CICK TO DOWNLOAD : SSC CGL TIER-1 PDF NOTES

Combined Graduate Level Examination 2024 Tier I

Roll Number	
Candidate Name	
Venue Name	
Exam Date	10/09/2024
Exam Time	4:00 PM - 5:00 PM
Subject	Combined Graduate Level Examination Tier I

Section : **General Intelligence and Reasoning**

Q.1 उस समुच्चय का चयन कीजिए, जिसमें संख्याएँ उसी प्रकार संबंधित हैं, जिस प्रकार निम्नलिखित समुच्चयों की संख्याएँ संबंधित हैं।
(173, 246)
(148, 196)
(नोट: पूर्ण संख्याओं पर संक्रिया का प्रयोग, संख्याओं को उनके घटक अंकों में विभक्त किए बिना किया जाना चाहिए। उदाहरण के लिए, 13 :- 13 पर संक्रिया जैसे कि जोड़ने/घटाने/गुणा करने आदि को 13 में किया जा सकता है। 13 को 1 और 3 में विभक्त करके और फिर 1 और 3 पर गणितीय संक्रियाओं का प्रयोग करने की अनुमति नहीं है।)

Ans
✔ 1. (154, 208)
✘ 2. (127, 194)
✘ 3. (169, 247)
✘ 4. (142, 176)

Question ID : **630680329241**
Option 1 ID : **6306801280786**
Option 2 ID : **6306801280787**
Option 3 ID : **6306801280785**
Option 4 ID : **6306801280788**
Status : **Answered**
Chosen Option : **1**

Q.2 निम्नलिखित में से कौन-सा अक्षर-समूह दी गई श्रृंखला को तार्किक रूप से पूर्ण बनाने के लिए इसमें प्रश्न चिह्न (?) को प्रतिस्थापित करेगा?
NUT, RYX, VCB, ZGF, ?

Ans
✘ 1. DKL
✘ 2. EKL
✘ 3. EKJ
✔ 4. DKJ

Question ID : **630680416935**
Option 1 ID : **6306801626505**
Option 2 ID : **6306801626506**
Option 3 ID : **6306801626503**
Option 4 ID : **6306801626504**
Status : **Answered**
Chosen Option : **4**

FREE! Download SSC CGL, CHSL E-BOOKS CLICK HERE

CICK TO DOWNLOAD : SSC CGL TIER-1 PDF NOTES

Q.3 एक निश्चित कूट भाषा में,

'A + B' का अर्थ है 'A, B की माता है';
'A – B' का अर्थ है 'A, B का भाई है';
'A × B' का अर्थ है 'A, B की पत्नी है' और
'A ÷ B' का अर्थ है 'A, B का पिता है'।

उपर्युक्त के आधार पर, यदि '5 – 2 × 4 ÷ 3' है, तो 5, 3 से किस प्रकार संबंधित है?

Ans
1. पिता का भाई
2. माता का भाई
3. पिता की बहन
4. माता की बहन

Question ID : **630680300378**
Option 1 ID : **6306801168412**
Option 2 ID : **6306801168413**
Option 3 ID : **6306801168411**
Option 4 ID : **6306801168414**
Status : **Answered**
Chosen Option : **2**

Q.4 उस विकल्प का चयन करें जो उन अक्षरों को निरूपित करता है जिन्हें नीचे दिए गए रिक्त स्थानों में बाएँ से दाएँ रखे जाने पर दी गई अक्षर श्रृंखला पूरी हो जाएगी।
P Q _ S _ P P Q P _ A P P Q _ S A P _ Q

Ans
1. PASPP
2. QSPAP
3. QPASP
4. PQSAP

Question ID : **630680416270**
Option 1 ID : **6306801623843**
Option 2 ID : **6306801623845**
Option 3 ID : **6306801623846**
Option 4 ID : **6306801623844**
Status : **Answered**
Chosen Option : **4**

FREE! Download SSC CGL, CHSL E-BOOKS CLICK HERE

CICK TO DOWNLOAD : SSC CGL TIER-1 PDF NOTES

Q.5 दिए गए वेन आरेख का अध्ययन करें और नीचे दिए गए प्रश्न का उत्तर दें।

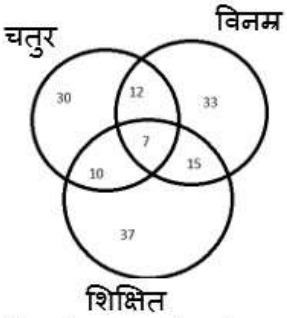

कितने चतुर लोग विनम्र हैं?

Ans
1. 12
2. 19
3. 7
4. 63

Question ID : **630680199099**
Option 1 ID : **630680772103**
Option 2 ID : **630680772106**
Option 3 ID : **630680772105**
Option 4 ID : **630680772104**
Status : **Answered**
Chosen Option : **1**

FREE! Download SSC CGL, CHSL E-BOOKS CLICK HERE

CICK TO DOWNLOAD : SSC CGL TIER-1 PDF NOTES

Q.6 दिए गए विकल्पों में से उस आकृति का चयन कीजिए जो निम्नलिखित श्रृंखला में प्रश्नचिह्न (?) को प्रतिस्थापित कर सकती है।

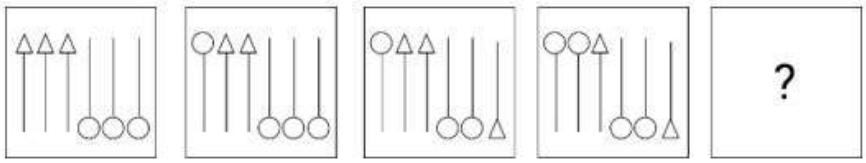

Ans

✗ 1.
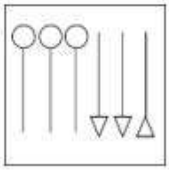

✗ 2.
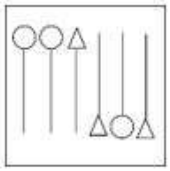

✓ 3.
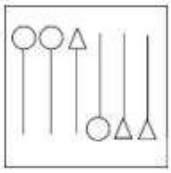

✗ 4.
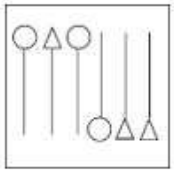

Question ID : **630680339307**
Option 1 ID : **6306801319797**
Option 2 ID : **6306801319800**
Option 3 ID : **6306801319798**
Option 4 ID : **6306801319799**
Status : **Answered**
Chosen Option : **3**

Q.7 यदि निम्नलिखित समीकरण में '+' और '-' को आपस में बदल दिया जाए और '×' और '÷' को आपस में बदल दिया जाए, तो प्रश्न चिह्न (?) के स्थान पर कौन-सी संख्या आएगी?
11 ÷ 12 – 78 × 6 + 57 = ?

Ans
✗ 1. 74
✗ 2. 83
✓ 3. 88
✗ 4. 95

Question ID : **630680163581**
Option 1 ID : **630680633510**
Option 2 ID : **630680633508**
Option 3 ID : **630680633511**
Option 4 ID : **630680633509**
Status : **Answered**
Chosen Option : **3**

FREE! Download SSC CGL, CHSL E-BOOKS CLICK HERE

CICK TO DOWNLOAD : SSC CGL TIER-1 PDF NOTES

Q.8 विकल्पों में दी गई उस आकृति की पहचान कीजिए जिसे प्रश्न चिह्न (?) के स्थान पर रखने पर शृंखला तार्किक रूप से पूरी हो जाएगी।

Y X P E 4	P Y E 4 X	E P 4 X Y	4 E X Y P	?

Ans

✗ 1.

X	4
Y	
E	P

✗ 2.

X	E
Y	
4	P

✗ 3.

X	4
E	
Y	P

✓ 4.

X	4
Y	
P	E

Question ID : **630680471487**
Option 1 ID : **6306801841662**
Option 2 ID : **6306801841665**
Option 3 ID : **6306801841664**
Option 4 ID : **6306801841663**
Status : **Answered**
Chosen Option : **4**

FREE! Download SSC CGL, CHSL E-BOOKS CLICK HERE

कर्मचारी चयन आयोग (CGL) परीक्षा अध्ययन सामग्री



- 100% Syllabus Covered
- 9 Books, 1000+ Pages - PRINT COPY
- 3000+ MCQs - PRINT COPY
- 08 Year Solved Papers & Mock Tests (PDF Copy)
- One Year Current Affairs (PDF Copy)

हिन्दी माध्यम

50% OFF

FREE SHIPPING

SSCPORTAL.IN

SSC CGL HINDI

PDF NOTES

100% Syllabus | 1,000+ Pages

https://sscportal.in/study-kit/cgl/tier-1-hindi

CICK TO DOWNLOAD : SSC CGL TIER-1 PDF NOTES

Q.9 निम्नलिखित चार विकल्पों में से तीन किसी न किसी रूप में समान हैं और इस प्रकार, एक समूह बनाते हैं। कौन-सा विकल्प उस समूह से संबंधित नहीं है?
(ध्यान दें: संख्याओं को उनके घटक अंकों में तोड़े बिना, संक्रियाएं पूर्ण संख्याओं पर की जानी चाहिए। उदाहरण के लिए 13 को लें- संख्या 13 में की जाने वाली संक्रिया, जैसे कि जोड़ना/घटाना/गुणा करना केवल 13 में किया जा सकता है। 13 को अंक 1 और 3 में तोड़ना और फिर 1 और 3 के साथ गणितीय संक्रियाएं करने की अनुमति नहीं है।)

Ans
✔ 1. 52 – 68 – 51
✘ 2. 81 – 118 – 91
✘ 3. 99 – 104 – 71
✘ 4. 21 – 38 – 31

Question ID : **630680196587**
Option 1 ID : **630680762648**
Option 2 ID : **630680762649**
Option 3 ID : **630680762650**
Option 4 ID : **630680762647**
Status : **Not Attempted and Marked For Review**
Chosen Option : **--**

Q.10 3, 7, 8, 2, 9 और 4 फलकों वाले एक ही पासे की दो अलग-अलग स्थितियाँ नीचे दिखाई गई हैं। उस संख्या का चयन कीजिए जो 4 संख्या वाले फलक के विपरीत फलक पर होगी।

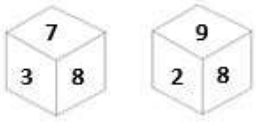

Ans
✘ 1. 3
✘ 2. 2
✔ 3. 8
✘ 4. 9

Question ID : **630680349069**
Option 1 ID : **6306801358567**
Option 2 ID : **6306801358565**
Option 3 ID : **6306801358568**
Option 4 ID : **6306801358566**
Status : **Answered**
Chosen Option : **3**

Q.11 निम्नलिखित समीकरण में, यदि '÷' और '–' को आपस में बदल दिया जाए तथा '×' और '+' को आपस में बदल दिया जाए, तो '?' के स्थान पर क्या आएगा?

15 × 9 + 7÷ 26 - 13 = ?

Ans
✘ 1. 68
✔ 2. 76
✘ 3. 84
✘ 4. 72

Question ID : **630680339257**
Option 1 ID : **6306801319598**
Option 2 ID : **6306801319600**
Option 3 ID : **6306801319597**
Option 4 ID : **6306801319599**
Status : **Answered**
Chosen Option : **2**

FREE! Download SSC CGL, CHSL E-BOOKS CLICK HERE

CICK TO DOWNLOAD : SSC CGL TIER-1 PDF NOTES

Q.12 एक पासे के विभिन्न फलकों पर छः अक्षर K, L, M, N, O और P लिखे गए हैं। नीचे चित्र में इस पासे की तीन स्थितियाँ दिखाई गई है। अक्षर M के विपरीत फलक पर कौन-सा अक्षर है?

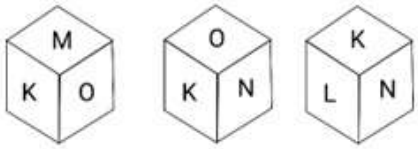

Ans
✔ 1. N
✘ 2. P
✘ 3. K
✘ 4. L

Question ID : **630680296577**
Option 1 ID : **6306801153960**
Option 2 ID : **6306801153962**
Option 3 ID : **6306801153959**
Option 4 ID : **6306801153961**
Status : **Answered**
Chosen Option : **1**

Q.13 दिए गए वेन आरेख का अध्ययन करें और नीचे दिए गए प्रश्न का उत्तर दें।

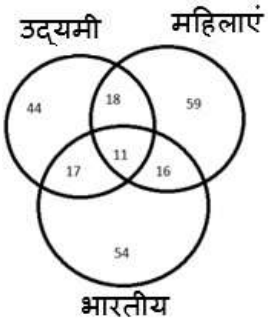

कितनी महिला उद्यमी भारतीय नहीं हैं?

Ans
✘ 1. 11
✔ 2. 18
✘ 3. 29
✘ 4. 17

Question ID : **630680199104**
Option 1 ID : **630680772125**
Option 2 ID : **630680772124**
Option 3 ID : **630680772123**
Option 4 ID : **630680772126**
Status : **Answered**
Chosen Option : **2**

FREE! Download SSC CGL, CHSL E-BOOKS CLICK HERE

CICK TO DOWNLOAD : SSC CGL TIER-1 PDF NOTES

Q.14 एक निश्चित कूट भाषा में, 'VERY' को '6314' के रूप में लिखा जाता है और 'VARY' को '1438' के रूप में लिखा जाता है। उसी भाषा में 'A' को किस प्रकार लिखा जाएगा?

Ans
- ✗ 1. 1
- ✓ 2. 8
- ✗ 3. 6
- ✗ 4. 4

Question ID : **630680339168**
Option 1 ID : **6306801319244**
Option 2 ID : **6306801319242**
Option 3 ID : **6306801319243**
Option 4 ID : **6306801319241**
Status : **Answered**
Chosen Option : **2**

Q.15 'WISDOM' शब्द के सभी अक्षर वर्णानुक्रम में व्यवस्थित किये जाते हैं। इस प्रकार बने नए अक्षर-समूह में बाएं छोर से तीसरे अक्षर और दाएं छोर से दूसरे अक्षर के बीच अंग्रेजी वर्णमाला क्रम में कितने अक्षर हैं?

Ans
- ✓ 1. पाँच
- ✗ 2. छह
- ✗ 3. दो
- ✗ 4. तीन

Question ID : **630680222292**
Option 1 ID : **630680863001**
Option 2 ID : **630680863002**
Option 3 ID : **630680862999**
Option 4 ID : **630680863000**
Status : **Answered**
Chosen Option : **1**

Q.16 निम्नलिखित में से कौन-सी संख्याएँ दी गई श्रृंखला में प्रश्न-चिह्न(?) का स्थान लेंगी?
4, ?, ?, 49, 121, 169, 289

Ans
- ✗ 1. 3, 9
- ✓ 2. 9, 25
- ✗ 3. 9, 16
- ✗ 4. 16, 25

Question ID : **630680411865**
Option 1 ID : **6306801606298**
Option 2 ID : **6306801606296**
Option 3 ID : **6306801606295**
Option 4 ID : **6306801606297**
Status : **Answered**
Chosen Option : **2**

FREE! Download SSC CGL, CHSL E-BOOKS CLICK HERE

CICK TO DOWNLOAD : SSC CGL TIER-1 PDF NOTES

Q.17 निम्नलिखित आकृतियों में एक कागज़ को मोड़ने का क्रम और मुड़े हुए कागज़ को काटने का तरीका दर्शाया गया है। खोले जाने पर यह कागज़ कैसा दिखाई देगा?

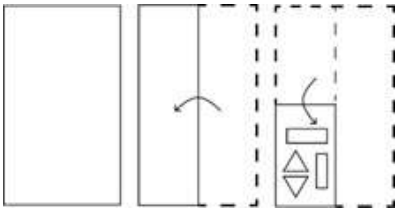

Ans

✔ 1.
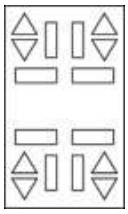

✘ 2.
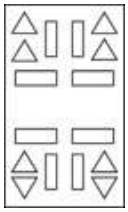

✘ 3.
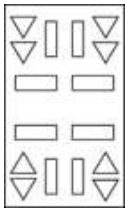

✘ 4.
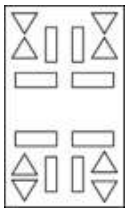

Question ID : **630680344228**
Option 1 ID : **6306801339226**
Option 2 ID : **6306801339227**
Option 3 ID : **6306801339225**
Option 4 ID : **6306801339228**
Status : **Answered**
Chosen Option : **1**

FREE! Download SSC CGL, CHSL E-BOOKS CLICK HERE

CICK TO DOWNLOAD : SSC CGL TIER-1 PDF NOTES

Q.18 दी गई आकृति में कितने वर्ग हैं?

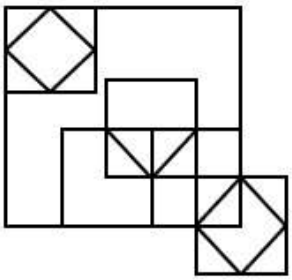

Ans
✗ 1. 10
✓ 2. 13
✗ 3. 11
✗ 4. 12

Question ID : **630680163560**
Option 1 ID : **630680633424**
Option 2 ID : **630680633426**
Option 3 ID : **630680633425**
Option 4 ID : **630680633427**
Status : **Answered**
Chosen Option : **2**

Q.19 जब दर्पण को MN पर रखा जाता हो तो दी गई आकृति के सही दर्पण प्रतिबिंब का चयन कीजिए।

Ans
✗ 1. 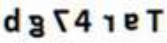
✗ 2. 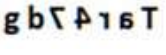
✓ 3. 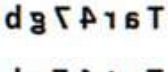
✗ 4.

Question ID : **630680325839**
Option 1 ID : **6306801267551**
Option 2 ID : **6306801267552**
Option 3 ID : **6306801267550**
Option 4 ID : **6306801267549**
Status : **Answered**
Chosen Option : **3**

FREE! Download SSC CGL, CHSL E-BOOKS CLICK HERE

CICK TO DOWNLOAD : SSC CGL TIER-1 PDF NOTES

Q.20 उस शब्द-युग्म का चयन कीजिए जो नीचे दिए गए शब्द-युग्म में व्यक्त किए गए संबंध के समान संबंध को सबसे अच्छा दर्शाता है। (शब्दों को अर्थपूर्ण हिंदी शब्द माना जाना चाहिए और इन्हें शब्द में अक्षरों की संख्या/व्यंजनों/स्वरों की संख्या के आधार पर एक दूसरे से संबंधित नहीं किया जाना चाहिए)
मौजूदगी : प्रचुरता

Ans
✗ 1. पालन-पोषण : उपेक्षा
✓ 2. अनंत : लौकिक
✗ 3. संक्षिप्त : विस्तृत
✗ 4. सार : विस्तार

Question ID : **630680416648**
Option 1 ID : **6306801625355**
Option 2 ID : **6306801625357**
Option 3 ID : **6306801625358**
Option 4 ID : **6306801625356**
Status : **Answered**
Chosen Option : **1**

Q.21 किसी निश्चित तर्क के अनुसार 62 का संबंध 79 से है। उसी तर्क के अनुसार 98 का संबंध 119 से है। उसी तर्क के अनुसार 14 निम्नलिखित में से किस संख्या से संबंधित है?
नोट: संख्याओं को उनके घटक अंकों में विभक्त किए बिना पूर्ण संख्याओं पर संक्रियाएं की जानी चाहिए। उदाहरण के लिए 13 को लें- 13 पर संक्रियाएं, जैसे कि जोड़ना/घटाना/गुणा आदि 13 में की जा सकती हैं। 13 को 1 और 3 में विभक्त करना और फिर 1 और 3 पर गणितीय संक्रियाएं करने की अनुमति नहीं है।

Ans
✗ 1. 19
✓ 2. 23
✗ 3. 21
✗ 4. 24

Question ID : **630680162511**
Option 1 ID : **630680629340**
Option 2 ID : **630680629342**
Option 3 ID : **630680629341**
Option 4 ID : **630680629343**
Status : **Answered**
Chosen Option : **2**

Q.22 उस समुच्चय का चयन कीजिए, जिसमें संख्याएँ उसी प्रकार संबंधित हैं, जिस प्रकार निम्नलिखित समुच्चयों की संख्याएँ संबंधित हैं।
(121, 93, 214)
(115, 87, 202)
(नोट: पूर्ण संख्याओं पर संक्रिया का प्रयोग, संख्याओं को उनके घटक अंकों में विभक्त किए बिना किया जाना चाहिए। उदाहरण के लिए, 13 :- 13 पर संक्रिया जैसे कि जोड़ने/घटाने/गुणा करने आदि को 13 में किया जा सकता है। 13 को 1 और 3 में विभक्त करके और फिर 1 और 3 पर गणितीय संक्रियाओं का प्रयोग करने की अनुमति नहीं है।)

Ans
✗ 1. (110, 94, 224)
✗ 2. (135, 117, 259)
✓ 3. (97, 112, 209)
✗ 4. (84, 99, 189)

Question ID : **630680329201**
Option 1 ID : **6306801280627**
Option 2 ID : **6306801280625**
Option 3 ID : **6306801280628**
Option 4 ID : **6306801280626**
Status : **Answered**
Chosen Option : **3**

FREE! Download SSC CGL, CHSL E-BOOKS CLICK HERE

CICK TO DOWNLOAD : SSC CGL TIER-1 PDF NOTES

Q.23 एक निश्चित कूट भाषा में 'make some more' को 'pb gq st' के रूप में कूटबद्ध किया जाता है और 'need more time' को 'ru ek gq' के रूप में कूटबद्ध किया जाता है। उस भाषा में 'more' के लिए कूट क्या है?

Ans
- ✗ 1. ek
- ✗ 2. pb
- ✓ 3. gq
- ✗ 4. st

Question ID : **630680222447**
Option 1 ID : **630680863549**
Option 2 ID : **630680863548**
Option 3 ID : **630680863550**
Option 4 ID : **630680863547**
Status : **Answered**
Chosen Option : **3**

Q.24 उस विकल्प का चयन कीजिए जो पाँचवें पद से उसी प्रकार संबंधित है जैसे दूसरा पद पहले पद से और चौथा पद तीसरे पद से संबंधित है।
SWEET : WSETE :: SALTY : ASLYT :: DRINK : ?

Ans
- ✓ 1. RDIKN
- ✗ 2. DRIKN
- ✗ 3. ESJOL
- ✗ 4. RDNIK

Question ID : **630680416203**
Option 1 ID : **6306801623578**
Option 2 ID : **6306801623577**
Option 3 ID : **6306801623576**
Option 4 ID : **6306801623575**
Status : **Answered**
Chosen Option : **1**

Q.25 निम्नलिखित चार विकल्पों में से तीन किसी न किसी रूप में एक समान हैं और इस प्रकार एक समूह का निर्माण करते हैं। उसमें से कौन सा विकल्प उस समूह से संबंधित नहीं है?
(नोट : अक्षर समूह में, असमान विकल्प व्यंजनों/स्वरों की संख्या या उनकी स्थिति पर आधारित नहीं है।)

Ans
- ✗ 1. EJM
- ✗ 2. FKN
- ✓ 3. DIM
- ✗ 4. CHK

Question ID : **63068075411**
Option 1 ID : **630680291797**
Option 2 ID : **630680291798**
Option 3 ID : **630680291796**
Option 4 ID : **630680291795**
Status : **Answered**
Chosen Option : **3**

Section : **General Awareness**

FREE! Download SSC CGL, CHSL E-BOOKS CLICK HERE

CICK TO DOWNLOAD : SSC CGL TIER-1 PDF NOTES

Q.1 2001 की जनगणना के आधार पर, त्वरित महिला साक्षरता कार्यक्रम उन जिलों में शुरू किया गया था जहाँ महिला साक्षरता दर _____ थी।

Ans
- ✗ 1. 50% से कम
- ✗ 2. 45% से कम
- ✗ 3. 35% से कम
- ✓ 4. 30% से कम

Question ID : **6306801048058**
Option 1 ID : **6306804114278**
Option 2 ID : **6306804114280**
Option 3 ID : **6306804114281**
Option 4 ID : **6306804114279**
Status : **Not Attempted and Marked For Review**
Chosen Option : **--**

Q.2 निम्नलिखित में से कौन-सी पुस्तक अपने संबंधित लेखक के साथ गलत रूप से युग्मित है?

Ans
- ✗ 1. व्हाई आई एम एन एथीस्ट - भगत सिंह
- ✗ 2. हिन्द स्वराज - महात्मा गांधी
- ✗ 3. गीतांजलि - रवीन्द्रनाथ टैगोर
- ✓ 4. द डिस्कवरी ऑफ इंडिया - सुभाष चंद्र बोस

Question ID : **630680412377**
Option 1 ID : **6306801608331**
Option 2 ID : **6306801608334**
Option 3 ID : **6306801608332**
Option 4 ID : **6306801608333**
Status : **Answered**
Chosen Option : **4**

Q.3 भारतीय संविधान की गणतंत्रात्मक विशेषता किस देश के संविधान से ली गई है?

Ans
- ✗ 1. आयरलैंड के संविधान
- ✗ 2. ऑस्ट्रेलिया के संविधान
- ✓ 3. फ्रांस के संविधान
- ✗ 4. ब्रिटिश संविधान

Question ID : **630680329437**
Option 1 ID : **6306801281491**
Option 2 ID : **6306801281489**
Option 3 ID : **6306801281492**
Option 4 ID : **6306801281490**
Status : **Answered**
Chosen Option : **4**

FREE! Download SSC CGL, CHSL E-BOOKS CLICK HERE

CICK TO DOWNLOAD : SSC CGL TIER-1 PDF NOTES

Q.4 किस कोशिका अंगक को छोटे गोलाकार कोशिकांग के रूप में परिभाषित किया गया है जो हाइड्रोजन पेरोक्साइड का उत्पादन करने के लिए ऑक्सीकरण अभिक्रिया से गुजरता है?

Ans
- ✔ 1. पेरोक्सीसोम्स
- ✘ 2. न्यूक्लियस
- ✘ 3. वैकुओल
- ✘ 4. सेंट्रोसोम

Question ID : **630680407463**
Option 1 ID : **6306801588793**
Option 2 ID : **6306801588792**
Option 3 ID : **6306801588790**
Option 4 ID : **6306801588791**
Status : **Answered**
Chosen Option : **4**

Q.5 निम्नलिखित में से वह कौन-सा कवि था जिसने 1913 में साहित्य के लिए नोबेल पुरस्कार प्राप्त किया था?

Ans
- ✘ 1. रूडयार्ड किपलिंग
- ✘ 2. अरबिंदो घोष
- ✔ 3. रवीन्द्रनाथ टैगोर
- ✘ 4. बंकिन चंद्र चट्टोपाध्याय

Question ID : **630680511520**
Option 1 ID : **6306801999204**
Option 2 ID : **6306801999205**
Option 3 ID : **6306801999203**
Option 4 ID : **6306801999202**
Status : **Answered**
Chosen Option : **3**

Q.6 हिमाचल प्रदेश द्वारा शुरू की गई 'मुख्यमंत्री सुख आश्रय योजना' से किस समूह के लोग लाभान्वित होंगे?

Ans
- ✘ 1. विद्यार्थी और शिक्षक
- ✘ 2. बेरोजगार युवा
- ✘ 3. कृषक और खेतिहर श्रमिक
- ✔ 4. अनाथ, दिव्यांग बच्चे, निराश्रित महिलाएँ और वरिष्ठ नागरिक

Question ID : **630680413080**
Option 1 ID : **6306801611145**
Option 2 ID : **6306801611146**
Option 3 ID : **6306801611143**
Option 4 ID : **6306801611144**
Status : **Answered**
Chosen Option : **4**

Q.7 निम्नलिखित में से कौन-सा तत्व एक उपधातु है?

Ans
- ✘ 1. ऑक्सीजन
- ✔ 2. सिलिकॉन
- ✘ 3. सोडियम
- ✘ 4. आयरन

Question ID : **63068098946**
Option 1 ID : **630680384491**
Option 2 ID : **630680384489**
Option 3 ID : **630680384490**
Option 4 ID : **630680384488**
Status : **Answered**
Chosen Option : **2**

FREE! Download SSC CGL, CHSL E-BOOKS CLICK HERE

CICK TO DOWNLOAD : SSC CGL TIER-1 PDF NOTES

Q.8 'सांगकेन' निम्नलिखित में से किस धर्म के लोगों द्वारा अरुणाचल प्रदेश में मनाया जाने वाला त्योहार है?

Ans
- ✗ 1. हिन्दू धर्म
- ✗ 2. जैन धर्म
- ✗ 3. इस्लाम
- ✓ 4. बौद्ध धर्म

Question ID : **630680163297**
Option 1 ID : **630680632394**
Option 2 ID : **630680632392**
Option 3 ID : **630680632395**
Option 4 ID : **630680632393**
Status : **Answered**
Chosen Option : **4**

Q.9 निम्नलिखित में से किस राज्य ने राज्य में पंजीकृत समाचार पत्र हॉकरों को महामारी के दौरान हुए नुकसान और उनके असंगठित क्षेत्र का हिस्सा होने पर विचार करते हुए 2021 में एक सामाजिक सुरक्षा योजना की घोषणा की थी?

Ans
- ✗ 1. गुजरात
- ✗ 2. तमिलनाडु
- ✗ 3. महाराष्ट्र
- ✓ 4. ओड़िशा

Question ID : **630680114033**
Option 1 ID : **630680441534**
Option 2 ID : **630680441537**
Option 3 ID : **630680441535**
Option 4 ID : **630680441536**
Status : **Not Attempted and Marked For Review**
Chosen Option : **--**

Q.10 रेडॉक्स अभिक्रिया का कारण क्या है?

Ans
- ✗ 1. दो उत्पादों के बीच इलेक्ट्रॉनों का स्थानांतरण
- ✗ 2. दो अभिकारकों के बीच हैलोजन का विनिमय
- ✓ 3. दो अभिकारकों के बीच इलेक्ट्रॉनों का स्थानांतरण
- ✗ 4. दो अभिकारकों के बीच न्यूट्रॉनों का स्थानांतरण

Question ID : **630680134694**
Option 1 ID : **630680521595**
Option 2 ID : **630680521597**
Option 3 ID : **630680521594**
Option 4 ID : **630680521596**
Status : **Answered**
Chosen Option : **2**

FREE! Download SSC CGL, CHSL E-BOOKS CLICK HERE

CICK TO DOWNLOAD : SSC CGL TIER-1 PDF NOTES

Q.11 पद्म श्री 2022से सम्मानित लोक गायिका माधुरी बर्थवाल भारत के निम्नलिखित में से किस राज्य से संबंधित हैं?

Ans
- ✗ 1. हिमाचल प्रदेश
- ✓ 2. उत्तराखंड
- ✗ 3. उत्तर प्रदेश
- ✗ 4. महाराष्ट्र

Question ID : **630680309204**
Option 1 ID : **6306801202994**
Option 2 ID : **6306801202993**
Option 3 ID : **6306801202995**
Option 4 ID : **6306801202996**
Status : **Not Attempted and Marked For Review**
Chosen Option : **--**

Q.12 राष्ट्रीय खेल विश्वविद्यालय _____ में स्थित है।

Ans
- ✗ 1. त्रिपुरा
- ✗ 2. मिज़ोरम
- ✓ 3. मणिपुर
- ✗ 4. मेघालय

Question ID : **630680309513**
Option 1 ID : **6306801204208**
Option 2 ID : **6306801204205**
Option 3 ID : **6306801204206**
Option 4 ID : **6306801204207**
Status : **Answered**
Chosen Option : **3**

Q.13 निम्नलिखित में से किस राज्य में भौगोलिक परिस्थितियों के कारण रेल परिवहन का विकास कम हुआ है?

Ans
- ✗ 1. उत्तर प्रदेश
- ✗ 2. बिहार
- ✗ 3. हरियाणा
- ✓ 4. सिक्किम

Question ID : **63068087516**
Option 1 ID : **630680339449**
Option 2 ID : **630680339451**
Option 3 ID : **630680339450**
Option 4 ID : **630680339452**
Status : **Answered**
Chosen Option : **4**

FREE! Download SSC CGL, CHSL E-BOOKS CLICK HERE

CICK TO DOWNLOAD : SSC CGL TIER-1 PDF NOTES

Q.14 निम्नलिखित में से कौन-सा विकल्प केंद्र सरकार का विधायी अंग है?

Ans
- ✗ 1. कार्यकारिणी
- ✓ 2. संसद
- ✗ 3. विधान सभा
- ✗ 4. न्यायपालिका

Question ID : **630680329458**
Option 1 ID : **6306801281574**
Option 2 ID : **6306801281573**
Option 3 ID : **6306801281576**
Option 4 ID : **6306801281575**
Status : **Answered**
Chosen Option : **2**

Q.15 निम्नलिखित में से किस राजवंश के रुद्रसेन द्वितीय ने गुप्त राजवंश के चंद्रगुप्त द्वितीय की बेटी प्रभावतीगुप्ता से विवाह किया था?

Ans
- ✓ 1. वाकाटक
- ✗ 2. चालुक्य
- ✗ 3. पुष्यभूति
- ✗ 4. पल्लव

Question ID : **630680412477**
Option 1 ID : **6306801608732**
Option 2 ID : **6306801608733**
Option 3 ID : **6306801608731**
Option 4 ID : **6306801608734**
Status : **Answered**
Chosen Option : **4**

Q.16 2021 की स्थिति के अनुसार, लगभग 70,00,000 km^2 के क्षेत्रफल के साथ दुनिया का सबसे बड़ा जल निकासी बेसिन कौन-सा है?

Ans
- ✗ 1. अमूर बेसिन
- ✗ 2. नील बेसिन
- ✗ 3. कांगो बेसिन
- ✓ 4. एमेज़ान बेसिन

Question ID : **63068094194**
Option 1 ID : **630680365471**
Option 2 ID : **630680365472**
Option 3 ID : **630680365473**
Option 4 ID : **630680365474**
Status : **Not Attempted and Marked For Review**
Chosen Option : **--**

FREE! Download SSC CGL, CHSL E-BOOKS CLICK HERE

CICK TO DOWNLOAD : SSC CGL TIER-1 PDF NOTES

Q.17 निम्नलिखित में से कौन-सी विशेषता, एवीज़ (Aves) की नहीं है?

Ans
- ✗ 1. ये गर्म खून वाले जीव होते हैं।
- ✗ 2. इनका हृदय चार कक्षीय होता है।
- ✗ 3. ये फेफड़ों से सांस लेते हैं।
- ✓ 4. ये जीवित बच्चों को जन्म देते हैं, कुछ अपवादों को छोड़कर जो कि अंडे देते हैं।

Question ID : **630680517146**
Option 1 ID : **6306802020980**
Option 2 ID : **6306802020981**
Option 3 ID : **6306802020982**
Option 4 ID : **6306802020983**
Status : **Answered**
Chosen Option : **2**

Q.18 यदि किसी बैंक की परिसंपत्ति उसकी देनदारियों से अधिक है, तो इसे किस प्रकार दर्ज किया जाएगा?

Ans
- ✓ 1. शुद्ध संपत्ति (नेट वर्थ)
- ✗ 2. रिज़र्व
- ✗ 3. देनदारियां
- ✗ 4. परिसंपत्तियां

Question ID : **63068069513**
Option 1 ID : **630680268720**
Option 2 ID : **630680268721**
Option 3 ID : **630680268719**
Option 4 ID : **630680268718**
Status : **Answered**
Chosen Option : **1**

Q.19 भारतीय हॉकी महासंघ की स्थापना कब हुई थी?

Ans
- ✗ 1. 1935 में
- ✗ 2. 1945 में
- ✗ 3. 1955 में
- ✓ 4. 1925 में

Question ID : **630680510818**
Option 1 ID : **6306801996403**
Option 2 ID : **6306801996404**
Option 3 ID : **6306801996405**
Option 4 ID : **6306801996402**
Status : **Answered**
Chosen Option : **4**

Q.20 बलबन द्वारा दिल्ली सल्तनत के निम्नलिखित में से किस विभाग का पुनर्गठन किया गया था?

Ans
- ✓ 1. दीवान-ए-अर्ज़
- ✗ 2. दीवान-ए-रिसालत
- ✗ 3. दीवान-ए-मुस्तखराज
- ✗ 4. दीवान-ए-इश्तियाक

Question ID : **630680412411**
Option 1 ID : **6306801608469**
Option 2 ID : **6306801608467**
Option 3 ID : **6306801608470**
Option 4 ID : **6306801608468**
Status : **Not Answered**
Chosen Option : **--**

FREE! Download SSC CGL, CHSL E-BOOKS CLICK HERE

SSC CGL (Tier-1) STUDY NOTES

- 100% CGL Exam Syllabus Covered
- 12 Books, 1300+ Pages
- 5600+ MCQs
- Previous Year Papers & Mocks
- 1 Year Current Affairs
- Support & Guidance

FREE SHIPPING

50% OFF

100% SAFE

SSCPORTAL.IN

SSC CGL

PDF NOTES

100% Syllabus | 1300+ Pages

50% OFF

CLICK HERE

CICK TO DOWNLOAD : SSC CGL TIER-1 PDF NOTES

Q.21 एम.जी. संगीत पुरस्कार प्रतिवर्ष निम्नलिखित में से किस राज्य द्वारा प्रदान किया जाता है?

Ans
✗ 1. मिज़ोरम
✓ 2. नागालैंड
✗ 3. छत्तीसगढ़
✗ 4. मणिपुर

Question ID : **630680412062**
Option 1 ID : **6306801607086**
Option 2 ID : **6306801607084**
Option 3 ID : **6306801607083**
Option 4 ID : **6306801607085**
Status : **Not Attempted and Marked For Review**
Chosen Option : **--**

Q.22 अगस्त 2021 में शुरू की गई पी.एम. उज्ज्वला 2.0 योजना का उद्देश्य क्या है?

Ans
✗ 1. लाभार्थियों को 20 मिलियन एल.पी.जी. (LPG) कनेक्शन प्रदान किए जाएंगे
✓ 2. लाभार्थियों को 10 मिलियन एल.पी.जी. (LPG) कनेक्शन प्रदान किए जाएंगे
✗ 3. व्यावसायिक उपयोग के लिए मुफ्त एल.पी.जी. (LPG) कनेक्शन
✗ 4. बी.पी.एल. (BPL) परिवारों के लिए मुफ्त गैस चूल्हा

Question ID : **630680112082**
Option 1 ID : **630680434057**
Option 2 ID : **630680434054**
Option 3 ID : **630680434055**
Option 4 ID : **630680434056**
Status : **Answered**
Chosen Option : **1**

Q.23 राष्ट्रीय कथक नृत्य संस्थान की स्थापना किस वर्ष हुई थी?

Ans
✗ 1. 1954
✗ 2. 1969
✗ 3. 1961
✓ 4. 1964

Question ID : **630680160192**
Option 1 ID : **630680620140**
Option 2 ID : **630680620143**
Option 3 ID : **630680620141**
Option 4 ID : **630680620142**
Status : **Not Answered**
Chosen Option : **--**

Q.24 वर्ष 2020-21 तक प्राप्त जानकारी के अनुसार, निम्नलिखित में से किस राज्य में 15 वर्ष और उससे अधिक आयु के व्यक्तियों के बीच बेरोजगारी दर सबसे कम थी?

Ans
✗ 1. मध्य प्रदेश
✗ 2. सिक्किम
✓ 3. गुजरात
✗ 4. छत्तीसगढ

Question ID : **630680409676**
Option 1 ID : **6306801597535**
Option 2 ID : **6306801597533**
Option 3 ID : **6306801597536**
Option 4 ID : **6306801597534**
Status : **Answered**
Chosen Option : **3**

FREE! Download SSC CGL, CHSL E-BOOKS CLICK HERE

CICK TO DOWNLOAD : SSC CGL TIER-1 PDF NOTES

Q.25 निम्नलिखित में से क्या, झारखंड और छत्तीसगढ़ में भूमि निम्नीकरण का मुख्य कारण है?

Ans
- ✗ 1. अति-सिंचाई
- ✗ 2. खाद का अधिक उपयोग
- ✗ 3. अतिचारण
- ✓ 4. खनन के कारण वनोन्मूलन

Question ID : **630680401291**
Option 1 ID : **6306801564969**
Option 2 ID : **6306801564972**
Option 3 ID : **6306801564970**
Option 4 ID : **6306801564971**
Status : **Answered**
Chosen Option : **4**

Section : **Quantitative Aptitude**

Q.1 एक निश्चित धनराशि पर साधारण ब्याज, धनराशि का पाँचवां हिस्सा है और प्रति वर्ष ब्याज की दर वर्षों की संख्या की 5 गुनी है। यदि ब्याज की दर में 3% की वृद्धि हो जाती है, तो 6 वर्षों के लिए ₹5,600 पर साधारण ब्याज (₹ में) कितना होगा?

Ans
- ✗ 1. 4268
- ✗ 2. 4668
- ✗ 3. 4168
- ✓ 4. 4368

Question ID : **630680344789**
Option 1 ID : **6306801341467**
Option 2 ID : **6306801341465**
Option 3 ID : **6306801341468**
Option 4 ID : **6306801341466**
Status : **Not Attempted and Marked For Review**
Chosen Option : **--**

Q.2 किसी वर्ग का क्षेत्रफल $16x^2 + 40x + 25$ वर्ग इकाई है। उस वर्ग का परिमाप ज्ञात कीजिए।

Ans
- ✗ 1. $2(10x + 8)$
- ✗ 2. $3(8x + 10)$
- ✗ 3. $3(10x + 8)$
- ✓ 4. $2(8x + 10)$

Question ID : **630680413547**
Option 1 ID : **6306801613013**
Option 2 ID : **6306801613012**
Option 3 ID : **6306801613015**
Option 4 ID : **6306801613014**
Status : **Answered**
Chosen Option : **4**

FREE! Download SSC CGL, CHSL E-BOOKS CLICK HERE

CICK TO DOWNLOAD : SSC CGL TIER-1 PDF NOTES

Q.3 फेस्टिवल सीजन में बिक्री के दौरान ₹1,000 के अंकित मूल्य वाली कांस्य की एक वस्तु, 20% और 30% और 10% की तीन क्रमागत छूटों के बाद बेची जाती है। एक महिला ग्राहक द्वारा फेस्टिवल सीजन के दौरान वस्तु खरीदने पर भुगतान की जाने वाली राशि (₹ में) क्या होगी?

Ans
- ✗ 1. 496
- ✗ 2. 508
- ✓ 3. 504
- ✗ 4. 564

Question ID : **630680239492**
Option 1 ID : **630680928919**
Option 2 ID : **630680928920**
Option 3 ID : **630680928921**
Option 4 ID : **630680928922**
Status : **Answered**
Chosen Option : **3**

Q.4 पाइप P और Q एक पानी की टंकी को क्रमशः 10 घंटे और 15 घंटे में पूरी तरह भर सकते हैं। एक पाइप R पानी से भरे उस टैंक को 12 घंटे में खाली कर सकता है। प्रारंभ में, टैंक खाली है और केवल पाइप P और Q 6 a.m को खोले जाते हैं और पाइप R को भी 9 a.m को खोला जाता है। टैंक कितने बजे तक पूरी तरह भर जाएगा?

Ans
- ✗ 1. 11 a.m.
- ✗ 2. 1 p.m.
- ✗ 3. 2 p.m.
- ✓ 4. 3 p.m.

Question ID : **630680395281**
Option 1 ID : **6306801541332**
Option 2 ID : **6306801541333**
Option 3 ID : **6306801541334**
Option 4 ID : **6306801541335**
Status : **Answered**
Chosen Option : **4**

Q.5 यदि $7\tan\theta = 3$, और θ एक न्यून कोण है, तो $\frac{5\sin\theta - \cos\theta}{5\sin\theta + 2\cos\theta}$ का मान ज्ञात कीजिए।

Ans
- ✗ 1. $\frac{11}{29}$
- ✗ 2. $\frac{9}{29}$
- ✗ 3. $\frac{7}{29}$
- ✓ 4. $\frac{8}{29}$

Question ID : **630680526478**
Option 1 ID : **6306802057978**
Option 2 ID : **6306802057981**
Option 3 ID : **6306802057980**
Option 4 ID : **6306802057979**
Status : **Answered**
Chosen Option : **4**

FREE! Download SSC CGL, CHSL E-BOOKS CLICK HERE

CICK TO DOWNLOAD : SSC CGL TIER-1 PDF NOTES

Q.6 $\frac{3sin58°}{5cos32°} + \frac{2cos62°}{5sin28°}$ का मान ज्ञात कीजिए।

Ans
1. 2
2. 1 ✔
3. 0
4. 3

Question ID : **630680518871**
Option 1 ID : **6306802027958**
Option 2 ID : **6306802027957**
Option 3 ID : **6306802027956**
Option 4 ID : **6306802027959**
Status : **Answered**
Chosen Option : **2**

Q.7 दी गई तालिका का अध्ययन कीजिए और निम्नलिखित प्रश्न का उत्तर दीजिए।

निम्नलिखित तालिका दिए गए वर्षों के अंत में शहर की जनसंख्या को दर्शाती है।

वर्ष	जनसंख्या
2012	64.5
2013	68.4
2014	72.6
2015	83.8
2016	100.6
2017	112.8
2018	128.4
2019	134.6
2020	156.8
2021	176.4

निम्नलिखित में से किस वर्ष में पिछले वर्ष की तुलना में वृद्धि दर सबसे अधिक है?

Ans
1. 2015
2. 2018
3. 2016 ✔
4. 2019

Question ID : **630680396985**
Option 1 ID : **6306801547997**
Option 2 ID : **6306801547998**
Option 3 ID : **6306801547999**
Option 4 ID : **6306801547996**
Status : **Answered**
Chosen Option : **2**

FREE! Download SSC CGL, CHSL E-BOOKS CLICK HERE

CICK TO DOWNLOAD : SSC CGL TIER-1 PDF NOTES

Q.8 यदि 62684*#, 7 अंकों की एक ऐसी संख्या है जो 8 और 5 दोनों से विभाज्य है, तो क्रमशः * और # के स्थान पर कौन से अंक आने चाहिए?

Ans
- ✗ 1. 2 और 0
- ✓ 2. 4 और 0
- ✗ 3. 0 और 5
- ✗ 4. 5 और 0

Question ID : **630680131179**
Option 1 ID : **630680507985**
Option 2 ID : **630680507982**
Option 3 ID : **630680507983**
Option 4 ID : **630680507984**
Status : **Answered**
Chosen Option : **2**

Q.9 यदि 45 ÷ 3 + 4 × A – 48 ÷ 24 + 4 = 1 है, तो A का मान क्या होगा?

Ans
- ✗ 1. 4
- ✗ 2. −2
- ✗ 3. 2
- ✓ 4. −4

Question ID : **630680388400**
Option 1 ID : **6306801514118**
Option 2 ID : **6306801514121**
Option 3 ID : **6306801514120**
Option 4 ID : **6306801514119**
Status : **Answered**
Chosen Option : **2**

Q.10 यदि $\triangle PQR \cong \triangle MON$ इस प्रकार है कि $\angle PQR = 82°, \angle QRP = 47°, \angle RPQ = 51°, \angle MON = (5y - 8)°$, QR = 24 और ON = 3x + y है , तो (x + y) ज्ञात करें।

Ans
- ✗ 1. 16
- ✗ 2. 14
- ✗ 3. 18
- ✓ 4. 20

Question ID : **630680526504**
Option 1 ID : **6306802058082**
Option 2 ID : **6306802058083**
Option 3 ID : **6306802058084**
Option 4 ID : **6306802058085**
Status : **Answered**
Chosen Option : **4**

FREE! Download SSC CGL, CHSL E-BOOKS CLICK HERE

CICK TO DOWNLOAD : SSC CGL TIER-1 PDF NOTES

Q.11 यदि एक आदमी 10 लीटर दूध में 6 लीटर पानी मिलाता है और दूसरा आदमी 8 लीटर दूध में 4 लीटर पानी मिलाता है। दोनों मिश्रणों में दूध का अनुपात ज्ञात कीजिए।

Ans
✔ 1. 15 : 16
✘ 2. 12 : 11
✘ 3. 16 : 17
✘ 4. 16 : 15

Question ID : **630680397224**
Option 1 ID : **6306801548952**
Option 2 ID : **6306801548955**
Option 3 ID : **6306801548954**
Option 4 ID : **6306801548953**
Status : **Not Attempted and Marked For Review**
Chosen Option : **--**

Q.12 यदि दो वृत्तों की एक उभयनिष्ठ बाह्य स्पर्श रेखा की लंबाई 9 है और एक उभयनिष्ठ आंतरिक स्पर्श रेखा की लंबाई 5 है, तो दोनों वृत्तों की त्रिज्याओं का गुणनफल क्या होगा?

Ans
✘ 1. 8
✘ 2. 12
✔ 3. 14
✘ 4. 10

Question ID : **630680195537**
Option 1 ID : **630680758617**
Option 2 ID : **630680758619**
Option 3 ID : **630680758620**
Option 4 ID : **630680758618**
Status : **Not Attempted and Marked For Review**
Chosen Option : **--**

Q.13 यदि $x^2 + y^2 = 280$ और $xy = 120$ है, तो $\frac{x-y}{x+y}$ का मान ज्ञात कीजिए।

Ans
✘ 1. $\sqrt{13}$
✔ 2. $\frac{1}{\sqrt{13}}$
✘ 3. $\frac{1}{\sqrt{15}}$
✘ 4. $\sqrt{15}$

Question ID : **630680413501**
Option 1 ID : **6306801612829**
Option 2 ID : **6306801612828**
Option 3 ID : **6306801612831**
Option 4 ID : **6306801612830**
Status : **Answered**
Chosen Option : **3**

FREE! Download SSC CGL, CHSL E-BOOKS CLICK HERE

CICK TO DOWNLOAD : SSC CGL TIER-1 PDF NOTES

Q.14 प्रथम 45 प्राकृतिक संख्याओं के वर्गों का औसत ज्ञात कीजिए।

Ans
1. 696.67
2. 698.67
3. 697.67 ✔
4. 699.67

Question ID : **630680568972**
Option 1 ID : **6306802224699**
Option 2 ID : **6306802224698**
Option 3 ID : **6306802224697**
Option 4 ID : **6306802224700**
Status : **Not Attempted and Marked For Review**
Chosen Option : **--**

Q.15 नीचे दिया गया पाई चार्ट एक कार्य दिवस में एक छात्र द्वारा विभिन्न गतिविधियों में बिताए गए घंटों की संख्या को दर्शाता है।
एक दिन में स्कूल में बिताए गए घंटों का प्रतिशत _____ है।

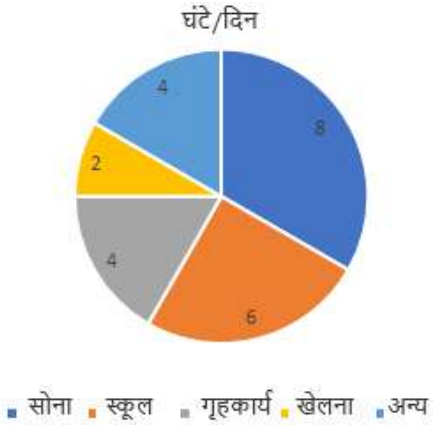

Ans
1. 25% ✔
2. 30%
3. 35%
4. 40%

Question ID : **630680405097**
Option 1 ID : **6306801579788**
Option 2 ID : **6306801579786**
Option 3 ID : **6306801579785**
Option 4 ID : **6306801579787**
Status : **Answered**
Chosen Option : **1**

FREE! Download SSC CGL, CHSL E-BOOKS CLICK HERE

CICK TO DOWNLOAD : SSC CGL TIER-1 PDF NOTES

Q.16 सुनीता और ममता के बीच एक चुनाव में, 85% मतदाताओं ने अपना मत डाले लेकिन 2% मत अवैध थे। यदि सुनीता को 64,974 मत मिले जो वैध मतों का 78% है, तो चुनाव में नामांकित मतदाताओं की कुल संख्या कितनी थी?

Ans
✔ 1. 1,00,000
✘ 2. 1,80,000
✘ 3. 1,65,000
✘ 4. 1,25,000

Question ID : **630680432457**
Option 1 ID : **6306801687831**
Option 2 ID : **6306801687834**
Option 3 ID : **6306801687833**
Option 4 ID : **6306801687832**
Status : **Answered**
Chosen Option : **1**

Q.17 दिया गया दंड आलेख दिए गए वर्षों में दुनिया भर से देश A में प्रत्यक्ष विदेशी निवेश (मिलियन डॉलर में) को दर्शाता है।

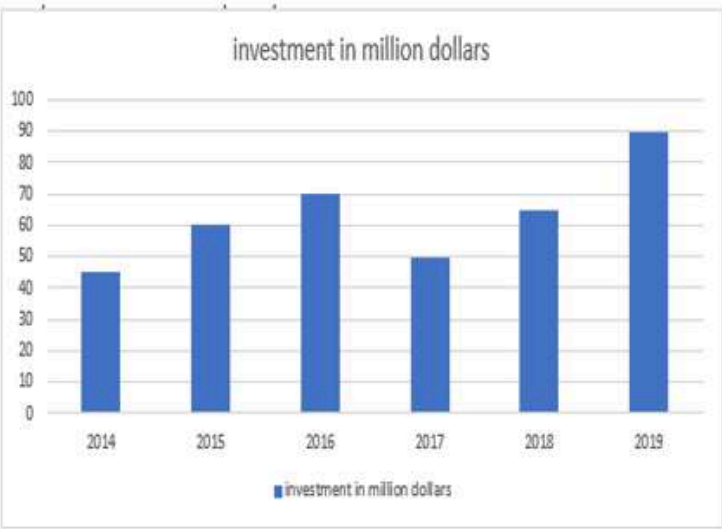

Investment in million dollars - मिलियन डॉलर में निवेश

2018 और 2015 में निवेश का अनुपात क्या था?

Ans
✘ 1. 12 : 11
✘ 2. 13 : 11
✔ 3. 13 : 12
✘ 4. 11 : 12

Question ID : **630680428150**
Option 1 ID : **6306801670645**
Option 2 ID : **6306801670647**
Option 3 ID : **6306801670646**
Option 4 ID : **6306801670644**
Status : **Answered**
Chosen Option : **3**

FREE! Download SSC CGL, CHSL E-BOOKS CLICK HERE

CICK TO DOWNLOAD : SSC CGL TIER-1 PDF NOTES

Q.18 एक दुकानदार किसी वस्तु के अंकित मूल्य पर 20% की छूट देता है और इस प्रकार 10% का लाभ प्राप्त करता है। वस्तु के क्रय मूल्य और अंकित मूल्य का अनुपात ज्ञात करें।

Ans
1. 11:14
2. 9:13
3. 8:11 ✔
4. 7:10

Question ID : **630680429049**
Option 1 ID : **6306801674243**
Option 2 ID : **6306801674242**
Option 3 ID : **6306801674241**
Option 4 ID : **6306801674240**
Status : **Answered**
Chosen Option : **4**

Q.19 स्थिर जल में एक नाव की चाल 18 km/h है और धारा की चाल 3 km/h है। वह धारा के अनुकूल 105 km की दूरी तय करने और वापस आने में कितना समय (घंटों में) लेगी?

Ans
1. 15
2. 12 ✔
3. 9
4. 10

Question ID : **630680428555**
Option 1 ID : **6306801672266**
Option 2 ID : **6306801672264**
Option 3 ID : **6306801672267**
Option 4 ID : **6306801672265**
Status : **Answered**
Chosen Option : **2**

Q.20 दो वृत्तों की त्रिज्याएँ 5 cm और 10 cm हैं और उनके केंद्रों के बीच की दूरी 17 cm है। उभयनिष्ठ अनुप्रस्थ स्पर्श रेखा की लंबाई ज्ञात कीजिए।

Ans
1. 8 cm ✔
2. 6 cm
3. 9 cm
4. 7.5 cm

Question ID : **630680404008**
Option 1 ID : **6306801575519**
Option 2 ID : **6306801575518**
Option 3 ID : **6306801575521**
Option 4 ID : **6306801575520**
Status : **Answered**
Chosen Option : **1**

FREE! Download SSC CGL, CHSL E-BOOKS CLICK HERE

CICK TO DOWNLOAD : SSC CGL TIER-1 PDF NOTES

Q.21 एक वृत्त के उस त्रिज्यखंड का केंद्रीय कोण कितना है जिसका क्षेत्रफल और परिमाप क्रमशः 209 cm^2 और 63 cm के बराबर है, यदि यह दिया गया है कि इसकी त्रिज्या एक गैर-ऋणात्मक पूर्णांक है? (एक दशमलव स्थान तक पूर्णांकित मान)

Ans
✔ 1. 49.5°
✘ 2. 55.5°
✘ 3. 51.5°
✘ 4. 53.5°

Question ID : **630680410857**
Option 1 ID : **6306801602183**
Option 2 ID : **6306801602186**
Option 3 ID : **6306801602184**
Option 4 ID : **6306801602185**
Status : **Not Attempted and Marked For Review**
Chosen Option : **--**

Q.22 यदि $7\cos^2\theta + 5\sin^2\theta - 6 = 0$ है, जहां $(0^\circ < \theta < 90^\circ)$, तो $1 + \sqrt{\frac{\sec\theta + \tan\theta}{\sec\theta - \tan\theta}}$ का मान ज्ञात कीजिए।

Ans
✘ 1. $\sqrt{2} - 1$
✘ 2. $\sqrt{2} - 2$
✔ 3. $\sqrt{2} + 2$
✘ 4. $\sqrt{2} + 1$

Question ID : **630680397627**
Option 1 ID : **6306801550430**
Option 2 ID : **6306801550431**
Option 3 ID : **6306801550433**
Option 4 ID : **6306801550432**
Status : **Answered**
Chosen Option : **2**

Q.23 कागज का एक आयताकार टुकड़ा 50 cm लंबा और 22 cm चौड़ा है। यदि कागज को उसकी चौड़ाई के साथ लपेटकर एक बेलन बनाया जाता है, तो बेलन का आयतन कितना होगा ?

Ans
✔ 1. 1,925 cm^3
✘ 2. 1,825 cm^3
✘ 3. 2,025 cm^3
✘ 4. 2,125 cm^3

Question ID : **63068091885**
Option 1 ID : **630680356275**
Option 2 ID : **630680356274**
Option 3 ID : **630680356276**
Option 4 ID : **630680356277**
Status : **Answered**
Chosen Option : **1**

FREE! Download SSC CGL, CHSL E-BOOKS CLICK HERE

CICK TO DOWNLOAD : SSC CGL TIER-1 PDF NOTES

Q.24 नीचे दी गई तालिका मार्च 2019 के माह के दौरान एक कंपनी के पांच कर्मचारियों द्वारा अर्जित आय (रुपये में) और आय स्रोतों को दर्शाती है।

स्रोत/ कर्मचारी का नाम	रीता	सीता	गीता	नीता	अनीता
ओवरटाइम	2,500	2,800	2,300	2,200	2,600
एरियर	4,500	4,800	4,900	5,300	5,600
बोनस	2,300	2,100	2,500	2,700	2,800
वेतन	24,000	30,000	29,000	32,000	34,000

दी गई अवधि के दौरान कंपनी द्वारा भुगतान की गई कुल एरियर की राशि, दी गई अवधि के दौरान भुगतान किए गए बोनस की कुल राशि का कितना प्रतिशत है?

Ans
✗ 1. 102.42%
✗ 2. 302.42%
✓ 3. 202.42%
✗ 4. 402.42%

Question ID : **630680428154**
Option 1 ID : **6306801670660**
Option 2 ID : **6306801670662**
Option 3 ID : **6306801670661**
Option 4 ID : **6306801670663**
Status : **Answered**
Chosen Option : **3**

Q.25 **k के कौन-से मान के लिए समीकरण 2x + 7ky – 8 = 0 और x + y – 9 = 0 का कोई हल नहीं होगा?**

Ans
✗ 1. $\frac{9}{7}$
✗ 2. $\frac{8}{9}$
✓ 3. $\frac{2}{7}$
✗ 4. $\frac{1}{2}$

Question ID : **630680296072**
Option 1 ID : **6306801151959**
Option 2 ID : **6306801151958**
Option 3 ID : **6306801151956**
Option 4 ID : **6306801151957**
Status : **Answered**
Chosen Option : **3**

Section : **English Comprehension**

FREE! Download SSC CGL, CHSL E-BOOKS CLICK HERE

CICK TO DOWNLOAD : SSC CGL TIER-1 PDF NOTES

Q.1 **Parts of the following sentence have been underlined and given as options. Select the option that contains an error.**
The supermarket is open from 10 a.m. still 10 p.m.

Ans
✗ 1. open
✗ 2. from 10 a.m.
✗ 3. The supermarket
✓ 4. still 10 p.m.

Question ID : **630680398609**
Option 1 ID : **6306801554439**
Option 2 ID : **6306801554440**
Option 3 ID : **6306801554438**
Option 4 ID : **6306801554441**
Status : **Answered**
Chosen Option : **4**

Q.2 **Select the most appropriate option to substitute the underlined word in the given sentence.**
Mayra has the ability for mathematics.

Ans
✗ 1. astute
✗ 2. attitude
✓ 3. aptitude
✗ 4. altitude

Question ID : **630680158965**
Option 1 ID : **630680615331**
Option 2 ID : **630680615328**
Option 3 ID : **630680615329**
Option 4 ID : **630680615330**
Status : **Answered**
Chosen Option : **3**

Q.3 **Select the word which means the same as the group of words given.**

Choice between two unsatisfactory alternatives

Ans
✓ 1. Dilemma
✗ 2. Confusion
✗ 3. Problem
✗ 4. Difficulty

Question ID : **630680414700**
Option 1 ID : **6306801617543**
Option 2 ID : **6306801617544**
Option 3 ID : **6306801617545**
Option 4 ID : **6306801617546**
Status : **Answered**
Chosen Option : **2**

FREE! Download SSC CGL, CHSL E-BOOKS CLICK HERE

CICK TO DOWNLOAD : SSC CGL TIER-1 PDF NOTES

Q.4 **Select the INCORRECTLY spelt word.**

Ans
✔ 1. Verifibility
✘ 2. Voluptuous
✘ 3. Verminous
✘ 4. Vomitus

Question ID : **630680409979**
Option 1 ID : **6306801598748**
Option 2 ID : **6306801598747**
Option 3 ID : **6306801598745**
Option 4 ID : **6306801598746**
Status : **Answered**
Chosen Option : **2**

Q.5 **Select the most appropriate ANTONYM of the given word.**
Mechanical

Ans
✘ 1. Automatised
✔ 2. Manual
✘ 3. Surrogate
✘ 4. Yielding

Question ID : **630680517572**
Option 1 ID : **6306802022684**
Option 2 ID : **6306802022687**
Option 3 ID : **6306802022685**
Option 4 ID : **6306802022686**
Status : **Not Attempted and Marked For Review**
Chosen Option : **--**

Q.6 **Select the most appropriate ANTONYM of the word in the brackets to fill in the blank.**

The _____ to the venue was decorated with beautiful lights. [exit]

Ans
✘ 1. ceremony
✘ 2. road
✔ 3. entry
✘ 4. house

Question ID : **630680132560**
Option 1 ID : **630680513377**
Option 2 ID : **630680513374**
Option 3 ID : **630680513375**
Option 4 ID : **630680513376**
Status : **Answered**
Chosen Option : **1**

FREE! Download SSC CGL, CHSL E-BOOKS CLICK HERE

CICK TO DOWNLOAD : SSC CGL TIER-1 PDF NOTES

Q.7 **Select the option that can be used as a one-word substitute for the given group of words.**

a short section (as of a book) that leads to or explains the main part.

Ans
✗ 1. Postscript
✗ 2. Paraphrase
✗ 3. Conclusion
✓ 4. Foreword

Question ID : **630680414776**
Option 1 ID : **6306801617849**
Option 2 ID : **6306801617850**
Option 3 ID : **6306801617848**
Option 4 ID : **6306801617847**
Status : **Answered**
Chosen Option : **3**

Q.8 **Select the most appropriate synonym of the bracketed word in the following sentence to fill in the blank.**

The media, these days, constructs _____(misleading) narratives on politics and celebrities to increase the viewership.

Ans
✗ 1. true
✗ 2. sincere
✓ 3. mendacious
✗ 4. candid

Question ID : **630680310098**
Option 1 ID : **6306801206533**
Option 2 ID : **6306801206535**
Option 3 ID : **6306801206536**
Option 4 ID : **6306801206534**
Status : **Answered**
Chosen Option : **3**

Q.9 **Select the most appropriate option to substitute the underlined segment in the given sentence.**
To <u>tell others secret information</u> only for enjoyment is not a good practice.

Ans
✗ 1. spill the cat
✗ 2. spill the onions
✗ 3. spill the words
✓ 4. spill the beans

Question ID : **630680316363**
Option 1 ID : **6306801231079**
Option 2 ID : **6306801231080**
Option 3 ID : **6306801231078**
Option 4 ID : **6306801231077**
Status : **Answered**
Chosen Option : **1**

FREE! Download SSC CGL, CHSL E-BOOKS CLICK HERE

CICK TO DOWNLOAD : SSC CGL TIER-1 PDF NOTES

Q.10 **Select the option that expresses the given sentence in passive voice.**
Historians tell us how this country was divided into three.

Ans
✗ 1. We are told by historians how this country has been divided into three.
✓ 2. We are told by historians how this country was divided into three.
✗ 3. We are told by historians how this country divided into three.
✗ 4. We have been told by historians how this country was divided into three.

Question ID : **630680415192**
Option 1 ID : **6306801619516**
Option 2 ID : **6306801619518**
Option 3 ID : **6306801619517**
Option 4 ID : **6306801619515**
Status : **Answered**
Chosen Option : **2**

Q.11 **Select the option that can be used as a one-word substitute for the given group of words.**
Fear of closed spaces

Ans
✗ 1. Photophobia
✓ 2. Claustrophobia
✗ 3. Optophobia
✗ 4. Agoraphobia

Question ID : **630680405384**
Option 1 ID : **6306801580748**
Option 2 ID : **6306801580746**
Option 3 ID : **6306801580749**
Option 4 ID : **6306801580747**
Status : **Not Answered**
Chosen Option : **--**

Q.12 **Select the correctly spelt word to fill in the blank.**

The transistors are used as the main _____, which are built into computer chips.

Ans
✗ 1. kamponents
✓ 2. components
✗ 3. cumponents
✗ 4. kumponents

Question ID : **630680374785**
Option 1 ID : **6306801460308**
Option 2 ID : **6306801460309**
Option 3 ID : **6306801460310**
Option 4 ID : **6306801460307**
Status : **Answered**
Chosen Option : **2**

FREE! Download SSC CGL, CHSL E-BOOKS CLICK HERE

CICK TO DOWNLOAD : SSC CGL TIER-1 PDF NOTES

Q.13 **Select the most appropriate meaning of the underlined word.**
Solomon's reputation as an accountant is <u>taintless</u> .

Ans
✗ 1. dubious
✗ 2. inconsistent
✗ 3. flawed
✓ 4. faultless

Question ID : **630680182096**
Option 1 ID : **630680705609**
Option 2 ID : **630680705608**
Option 3 ID : **630680705606**
Option 4 ID : **630680705607**
Status : **Answered**
Chosen Option : **2**

Q.14 **Select the most appropriate meaning of the given idiom.**

Care a hang

Ans
✗ 1. Hanging clothes to dry
✗ 2. Caring too much
✓ 3. Showing no interest
✗ 4. Putting an outfit on a hanger

Question ID : **630680374772**
Option 1 ID : **6306801460258**
Option 2 ID : **6306801460255**
Option 3 ID : **6306801460256**
Option 4 ID : **6306801460257**
Status : **Answered**
Chosen Option : **2**

Q.15 **The following sentence has been divided into four segments. Identify the segment that contains a grammatical error.**

My sister, Juliet, / got married / as her / was 23.

Ans
✗ 1. got married
✗ 2. was 23.
✗ 3. My sister, Juliet,
✓ 4. as her

Question ID : **630680300645**
Option 1 ID : **6306801169404**
Option 2 ID : **6306801169406**
Option 3 ID : **6306801169403**
Option 4 ID : **6306801169405**
Status : **Answered**
Chosen Option : **4**

FREE! Download SSC CGL, CHSL E-BOOKS CLICK HERE

CICK TO DOWNLOAD : SSC CGL TIER-1 PDF NOTES

Q.16 **Select the most appropriate option to fill in the blank.**

The group of travellers were wonderstruck by the _____ of the coin.

Ans
✗ 1. wide
✗ 2. wait
✓ 3. weight
✗ 4. white

Question ID : **63068069102**
Option 1 ID : **630680267089**
Option 2 ID : **630680267086**
Option 3 ID : **630680267088**
Option 4 ID : **630680267087**
Status : **Answered**
Chosen Option : **3**

Q.17 **Select the option that can substitute/replace the bracketed word correctly and complete the sentence.**

They could (always) stay in, or go for a walk.

Ans
✗ 1. not only
✓ 2. either
✗ 3. neither
✗ 4. had better

Question ID : **630680176612**
Option 1 ID : **630680684671**
Option 2 ID : **630680684669**
Option 3 ID : **630680684668**
Option 4 ID : **630680684670**
Status : **Answered**
Chosen Option : **2**

Q.18 **Parts of a sentence are given below in jumbled order. Select the option that arranges the parts in the correct sequence to form a meaningful sentence.**
(P) technology has revolutionised
(Q) and it has transformed the way
(O) every aspect of our lives
(R) we communicate and connect

Ans
✗ 1. ORQP
✗ 2. RPQO
✗ 3. RPOQ
✓ 4. POQR

Question ID : **630680380983**
Option 1 ID : **6306801484921**
Option 2 ID : **6306801484919**
Option 3 ID : **6306801484922**
Option 4 ID : **6306801484920**
Status : **Answered**
Chosen Option : **2**

FREE! Download SSC CGL, CHSL E-BOOKS CLICK HERE

CICK TO DOWNLOAD : SSC CGL TIER-1 PDF NOTES

Q.19 Select the most appropriate synonym of the given word.
Evaluate

Ans
✔ 1. Assess
✘ 2. Misjudge
✘ 3. Unity
✘ 4. Misquote

Question ID : **630680209304**
Option 1 ID : **630680811432**
Option 2 ID : **630680811434**
Option 3 ID : **630680811433**
Option 4 ID : **630680811431**
Status : **Answered**
Chosen Option : **2**

Q.20 Select the option that expresses the given sentence in passive voice.

The company will launch the new product next month, and they are already promoting it through various marketing channels.

Ans
✔ 1. The new product will be launched by the company next month, and it is already being promoted through various marketing channels.
✘ 2. The new product was launched by the company next month, and it is already promoted through various marketing channels.
✘ 3. The new product will have been launched by the company next month, and it was already being promoted through various marketing channels.
✘ 4. The new product were been launched by the company next month, and it already was promoting through various marketing channels.

Question ID : **630680374380**
Option 1 ID : **6306801458703**
Option 2 ID : **6306801458704**
Option 3 ID : **6306801458705**
Option 4 ID : **6306801458706**
Status : **Answered**
Chosen Option : **1**

FREE! Download SSC CGL, CHSL E-BOOKS CLICK HERE

CICK TO DOWNLOAD : SSC CGL TIER-1 PDF NOTES

Comprehension:

In the following passage, some words have been deleted. Read the passage carefully and select the most appropriate option to fill in each blank.
As a result of Covid-19, the quick (1) _____ to digital training has exposed the hazards of student disengagement and the resulting consequences of lower student performance across (2) _____ courses.
The latest (3) _____ has altered the education of millions of people around the world. New approaches and improvements in the school system are urgently required. Considering the increasing digital divide, the strategy may exacerbate existing inequality disparities. More than 500 million students, at various levels, around the world were forced to (4) _____ their studies. These changes have caused and will continue to cause some inconvenience, but they will also foster innovation and future reforms inside this education system.
During a global Covid-19 pandemic, the 'pile-on effect' of the coronavirus can have long-term consequences for schooling, notably for the most vulnerable. Children, (5) _____ basic, core learning (reading, math, languages, etc.) was weak to begin with, face a significant risk of regression. During Covid-19, millions of children whose right to education has already been violated, particularly girls, are exposed to greater health and well-being hazards (both psychosocial and physical).

SubQuestion No : 21

Q.21 Select the most appropriate option to fill in blank number 1.

Ans
✗ 1. set
✗ 2. end
✓ 3. transition
✗ 4. stagnation

Question ID : **630680156415**
Option 1 ID : **630680605321**
Option 2 ID : **630680605323**
Option 3 ID : **630680605322**
Option 4 ID : **630680605320**
Status : **Not Answered**
Chosen Option : **--**

Comprehension:

In the following passage, some words have been deleted. Read the passage carefully and select the most appropriate option to fill in each blank.
As a result of Covid-19, the quick (1) _____ to digital training has exposed the hazards of student disengagement and the resulting consequences of lower student performance across (2) _____ courses.
The latest (3) _____ has altered the education of millions of people around the world. New approaches and improvements in the school system are urgently required. Considering the increasing digital divide, the strategy may exacerbate existing inequality disparities. More than 500 million students, at various levels, around the world were forced to (4) _____ their studies. These changes have caused and will continue to cause some inconvenience, but they will also foster innovation and future reforms inside this education system.
During a global Covid-19 pandemic, the 'pile-on effect' of the coronavirus can have long-term consequences for schooling, notably for the most vulnerable. Children, (5) _____ basic, core learning (reading, math, languages, etc.) was weak to begin with, face a significant risk of regression. During Covid-19, millions of children whose right to education has already been violated, particularly girls, are exposed to greater health and well-being hazards (both psychosocial and physical).

SubQuestion No : 22

Q.22 Select the most appropriate option to fill in blank number 2.

Ans
✗ 1. limit
✗ 2. fewer
✗ 3. particular
✓ 4. numerous

Question ID : **630680156416**
Option 1 ID : **630680605326**
Option 2 ID : **630680605327**
Option 3 ID : **630680605325**
Option 4 ID : **630680605324**
Status : **Not Answered**
Chosen Option : **--**

FREE! Download SSC CGL, CHSL E-BOOKS CLICK HERE

CICK TO DOWNLOAD : SSC CGL TIER-1 PDF NOTES

Comprehension:

In the following passage, some words have been deleted. Read the passage carefully and select the most appropriate option to fill in each blank.
As a result of Covid-19, the quick (1) _____ to digital training has exposed the hazards of student disengagement and the resulting consequences of lower student performance across (2) _____ courses.
The latest (3) _____ has altered the education of millions of people around the world. New approaches and improvements in the school system are urgently required. Considering the increasing digital divide, the strategy may exacerbate existing inequality disparities. More than 500 million students, at various levels, around the world were forced to (4) _____ their studies. These changes have caused and will continue to cause some inconvenience, but they will also foster innovation and future reforms inside this education system.
During a global Covid-19 pandemic, the 'pile-on effect' of the coronavirus can have long-term consequences for schooling, notably for the most vulnerable. Children, (5) _____ basic, core learning (reading, math, languages, etc.) was weak to begin with, face a significant risk of regression. During Covid-19, millions of children whose right to education has already been violated, particularly girls, are exposed to greater health and well-being hazards (both psychosocial and physical).

SubQuestion No : 23

Q.23 Select the most appropriate option to fill in blank number 3.

Ans
✗ 1. local
✓ 2. pandemic
✗ 3. endemic
✗ 4. epidemic

Question ID : **630680156417**
Option 1 ID : **630680605328**
Option 2 ID : **630680605331**
Option 3 ID : **630680605330**
Option 4 ID : **630680605329**
Status : **Not Answered**
Chosen Option : **--**

Comprehension:

In the following passage, some words have been deleted. Read the passage carefully and select the most appropriate option to fill in each blank.
As a result of Covid-19, the quick (1) _____ to digital training has exposed the hazards of student disengagement and the resulting consequences of lower student performance across (2) _____ courses.
The latest (3) _____ has altered the education of millions of people around the world. New approaches and improvements in the school system are urgently required. Considering the increasing digital divide, the strategy may exacerbate existing inequality disparities. More than 500 million students, at various levels, around the world were forced to (4) _____ their studies. These changes have caused and will continue to cause some inconvenience, but they will also foster innovation and future reforms inside this education system.
During a global Covid-19 pandemic, the 'pile-on effect' of the coronavirus can have long-term consequences for schooling, notably for the most vulnerable. Children, (5) _____ basic, core learning (reading, math, languages, etc.) was weak to begin with, face a significant risk of regression. During Covid-19, millions of children whose right to education has already been violated, particularly girls, are exposed to greater health and well-being hazards (both psychosocial and physical).

SubQuestion No : 24

Q.24 Select the most appropriate option to fill in blank number 4.

Ans
✗ 1. reopened
✓ 2. suspend
✗ 3. carry on
✗ 4. resume

Question ID : **630680156418**
Option 1 ID : **630680605334**
Option 2 ID : **630680605333**
Option 3 ID : **630680605335**
Option 4 ID : **630680605332**
Status : **Not Answered**
Chosen Option : **--**

FREE! Download SSC CGL, CHSL E-BOOKS CLICK HERE

कर्मचारी चयन आयोग (CGL) परीक्षा अध्ययन सामग्री



- 100% Syllabus Covered
- 9 Books, 1000+ Pages - PRINT COPY
- 3000+ MCQs - PRINT COPY
- 08 Year Solved Papers & Mock Tests (PDF Copy)
- One Year Current Affairs (PDF Copy)

हिन्दी माध्यम

50% OFF

FREE SHIPPING

SSCPORTAL.IN

SSC CGL HINDI

PDF NOTES

100% Syllabus | 1,000+ Pages

https://sscportal.in/study-kit/cgl/tier-1-hindi

CICK TO DOWNLOAD : SSC CGL TIER-1 PDF NOTES

Comprehension:

In the following passage, some words have been deleted. Read the passage carefully and select the most appropriate option to fill in each blank.
As a result of Covid-19, the quick (1) _____ to digital training has exposed the hazards of student disengagement and the resulting consequences of lower student performance across (2) _____ courses.
The latest (3) _____ has altered the education of millions of people around the world. New approaches and improvements in the school system are urgently required. Considering the increasing digital divide, the strategy may exacerbate existing inequality disparities. More than 500 million students, at various levels, around the world were forced to (4) _____ their studies. These changes have caused and will continue to cause some inconvenience, but they will also foster innovation and future reforms inside this education system.
During a global Covid-19 pandemic, the 'pile-on effect' of the coronavirus can have long-term consequences for schooling, notably for the most vulnerable. Children, (5) _____ basic, core learning (reading, math, languages, etc.) was weak to begin with, face a significant risk of regression. During Covid-19, millions of children whose right to education has already been violated, particularly girls, are exposed to greater health and well-being hazards (both psychosocial and physical).

SubQuestion No : 25

Q.25 Select the most appropriate option to fill in blank number 5.

Ans
✗ 1. who
✓ 2. whose
✗ 3. which
✗ 4. whom

Question ID : **630680156419**
Option 1 ID : **630680605337**
Option 2 ID : **630680605336**
Option 3 ID : **630680605339**
Option 4 ID : **630680605338**
Status : **Not Answered**
Chosen Option : **--**

FREE! Download SSC CGL, CHSL E-BOOKS CLICK HERE