CICK TO DOWNLOAD : SSC CGL TIER-1 PDF NOTES

Combined Graduate Level Examination 2024 Tier I

Roll Number	
Candidate Name	
Venue Name	
Exam Date	11/09/2024
Exam Time	12:30 PM - 1:30 PM
Subject	Combined Graduate Level Examination Tier I

Section : **General Intelligence and Reasoning**

Q.1 यदि शब्द 'JEALOUS' के प्रत्येक अक्षर को अंग्रेजी वर्णमाला के क्रम में व्यवस्थित किया जाए तो कितने अक्षरों की स्थिति अपरिवर्तित रहेगी?

Ans

✗ 1. दो

✗ 2. एक

✗ 3. चार

✓ 4. तीन

Question ID : **630680222290**
Option 1 ID : **630680862992**
Option 2 ID : **630680862991**
Option 3 ID : **630680862994**
Option 4 ID : **630680862993**
Status : **Answered**
Chosen Option : **4**

FREE! Download SSC CGL, CHSL E-BOOKS CLICK HERE

CICK TO DOWNLOAD : SSC CGL TIER-1 PDF NOTES

Q.2 एक कागज को नीचे दिए गए चित्र के अनुसार मोड़ा और काटा जाता है। यह कागज खोलने पर कैसा दिखाई देगा?

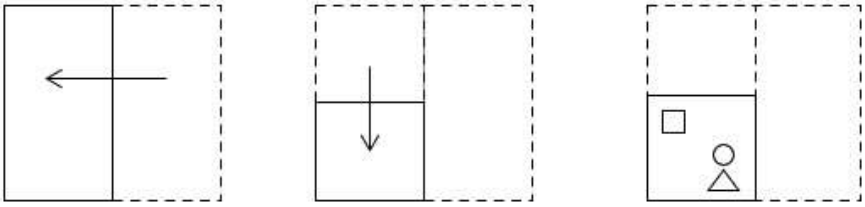

Ans

✗ 1.

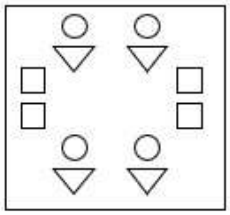

✓ 2.

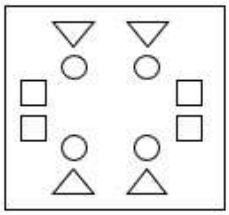

✗ 3.

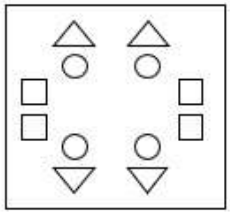

✗ 4.

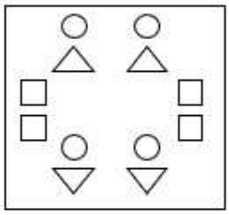

Question ID : **630680296647**
Option 1 ID : **6306801154239**
Option 2 ID : **6306801154242**
Option 3 ID : **6306801154241**
Option 4 ID : **6306801154240**
Status : **Answered**
Chosen Option : **2**

FREE! Download SSC CGL, CHSL E-BOOKS CLICK HERE

CICK TO DOWNLOAD : SSC CGL TIER-1 PDF NOTES

Q.3 निम्नलिखित संख्याओं में से तीन किसी प्रकार से एक समान हैं और एक उनसे असंगत है। उस असंगत का चयन कीजिए।
(नोट: गणितीय संक्रियाएं संख्याओं को उनके घटक अंकों में तोड़े बिना पूर्ण संख्याओं पर की जानी चाहिए। उदाहरण के लिए 13 - 13 पर की जाने वाली संक्रियाएं, जैसे जोड़ना, घटाना, गुणा करना इत्यादि, केवल 13 पर की जा सकती हैं। 13 को 1 और 3 में तोड़ना और तब 1 और 3 पर गणितीय संक्रियाएँ करने की अनुमति नहीं है।)

Ans
✗ 1. 65 – 104
✓ 2. 45 – 70
✗ 3. 75 – 120
✗ 4. 90 – 144

Question ID : **630680389584**
Option 1 ID : **6306801518795**
Option 2 ID : **6306801518796**
Option 3 ID : **6306801518794**
Option 4 ID : **6306801518797**
Status : **Answered**
Chosen Option : **2**

Q.4 उस त्रिक का चयन करें जिसमें दी गई संख्याएं एक - दूसरे से उसी प्रकार संबंधित हैं, जिस प्रकार निम्नलिखित त्रिकों की संख्याएं एक - दूसरे से संबंधित हैं।
8-17-35
23-47-95
नोट: संख्याओं को उनके घटक अंकों में विभक्त किए बिना पूर्ण संख्याओं पर संक्रियाएं की जानी चाहिए। उदाहरण के लिए 13 को लें- 13 पर संक्रियाएं, जैसे कि जोड़ना/घटाना/गुणा आदि 13 में की जा सकती हैं। 13 को 1 और 3 में विभक्त करना और फिर 1 और 3 पर गणितीय संक्रियाएं करने की अनुमति नहीं है।

Ans
✗ 1. 9-20-41
✓ 2. 12-25-51
✗ 3. 16-32-62
✗ 4. 13-29-55

Question ID : **630680132370**
Option 1 ID : **630680512642**
Option 2 ID : **630680512643**
Option 3 ID : **630680512645**
Option 4 ID : **630680512644**
Status : **Answered**
Chosen Option : **2**

FREE! Download SSC CGL, CHSL E-BOOKS CLICK HERE

CICK TO DOWNLOAD : SSC CGL TIER-1 PDF NOTES

Q.5 उस विकल्प आकृति का चयन कीजिए जिसमें दी गई आकृति (X) सन्निहित है (आकृति को घुमाने की अनुमति नहीं है)।

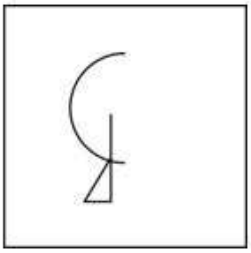

(X)

Ans

✗ 1.

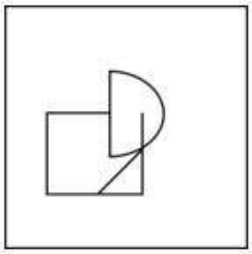

✓ 2.

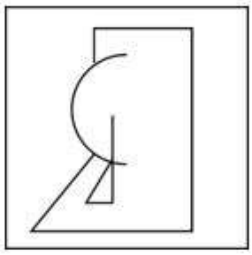

✗ 3.

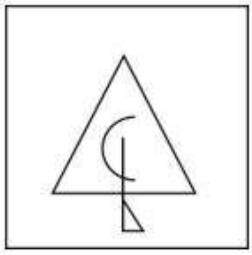

✗ 4.

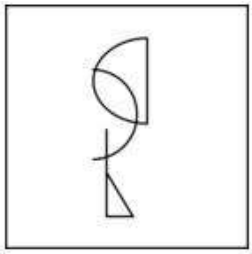

Question ID : **630680332537**
Option 1 ID : **6306801293586**
Option 2 ID : **6306801293587**
Option 3 ID : **6306801293585**
Option 4 ID : **6306801293588**
Status : **Answered**
Chosen Option : **2**

FREE! Download SSC CGL, CHSL E-BOOKS CLICK HERE

CICK TO DOWNLOAD : SSC CGL TIER-1 PDF NOTES

Q.6 एक निश्चित कूट भाषा में,
A + B का अर्थ है कि 'A, B की पत्नी है'।
A – B का अर्थ है कि 'A, B का पुत्र है'।
A × B का अर्थ है कि 'A, B का पति है'।
A ÷ B का अर्थ है कि 'A, B का पिता है'।
उपर्युक्त के आधार पर, यदि 'P – Q + R ÷ S × T' है, तो P का T से क्या संबंध है?

Ans
✔ 1. देवर
✘ 2. पिता
✘ 3. ससुर
✘ 4. पौत्र

Question ID : **630680313756**
Option 1 ID : **6306801220865**
Option 2 ID : **6306801220867**
Option 3 ID : **6306801220868**
Option 4 ID : **6306801220866**
Status : **Answered**
Chosen Option : **1**

Q.7 चार अक्षर-समूह दिए गए हैं, जिनमें से तीन किसी न किसी रूप में एक जैसे हैं और एक भिन्न है। भिन्न समूह का चयन कीजिए।
नोट: अक्षर समूह में, भिन्न व्यंजनों/स्वरों की संख्या या उनकी स्थिति पर आधारित नहीं है।

Ans
✘ 1. XUZ
✔ 2. LKP
✘ 3. GDI
✘ 4. SPU

Question ID : **63068077064**
Option 1 ID : **630680298356**
Option 2 ID : **630680298353**
Option 3 ID : **630680298354**
Option 4 ID : **630680298355**
Status : **Answered**
Chosen Option : **2**

Q.8 निम्नलिखित समीकरण में, यदि '÷' और '–' को आपस में बदल दिया जाए तथा '×' और '+' को आपस में बदल दिया जाए, तो '?' के स्थान पर क्या आएगा?

8 + 6 ÷ 51 – 17 × 13 = ?

Ans
✔ 1. 58
✘ 2. 32
✘ 3. 63
✘ 4. 71

Question ID : **630680339259**
Option 1 ID : **6306801319607**
Option 2 ID : **6306801319605**
Option 3 ID : **6306801319608**
Option 4 ID : **6306801319606**
Status : **Answered**
Chosen Option : **1**

FREE! Download SSC CGL, CHSL E-BOOKS CLICK HERE

कर्मचारी चयन आयोग (CGL) परीक्षा अध्ययन सामग्री



- 100% Syllabus Covered
- 9 Books, 1000+ Pages - PRINT COPY
- 3000+ MCQs - PRINT COPY
- 08 Year Solved Papers & Mock Tests (PDF Copy)
- One Year Current Affairs (PDF Copy)

हिन्दी माध्यम

50% OFF

FREE SHIPPING

SSCPORTAL.IN

SSC CGL HINDI

PDF NOTES

100% Syllabus | 1,000+ Pages

https://sscportal.in/study-kit/cgl/tier-1-hindi

CICK TO DOWNLOAD : SSC CGL TIER-1 PDF NOTES

Q.9 उस समुच्चय का चयन कीजिए, जिसमें संख्याएँ उसी प्रकार संबंधित हैं, जिस प्रकार निम्नलिखित समुच्चयों की संख्याएँ संबंधित हैं।
(34, 15, 64)
(29, 17, 63)
(नोट: पूर्ण संख्याओं पर संक्रिया का प्रयोग, संख्याओं को उनके घटक अंकों में विभक्त किए बिना किया जाना चाहिए। उदाहरण के लिए, 13 :- 13 पर संक्रिया जैसे कि जोड़ने/घटाने/गुणा करने आदि को 13 में किया जा सकता है। 13 को 1 और 3 में विभक्त करके और फिर 1 और 3 पर गणितीय संक्रियाओं का प्रयोग करने की अनुमति नहीं है।)

Ans
✔ 1. (25, 14, 53)
✘ 2. (24, 28, 76)
✘ 3. (31, 23, 54)
✘ 4. (44, 32, 98)

Question ID : **630680329213**
Option 1 ID : **6306801280676**
Option 2 ID : **6306801280675**
Option 3 ID : **6306801280674**
Option 4 ID : **6306801280673**
Status : **Answered**
Chosen Option : **1**

FREE! Download SSC CGL, CHSL E-BOOKS CLICK HERE

CICK TO DOWNLOAD : SSC CGL TIER-1 PDF NOTES

Q.10 नीचे दर्शाए गए अनुसार, दर्पण को MN पर रखे जाने पर, दी गई आकृति की सही दर्पण छवि का चयन कीजिए।

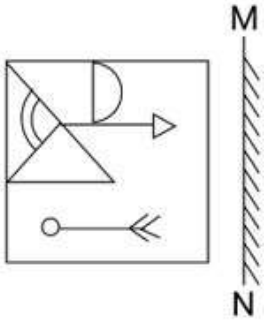

Ans

✔ 1.
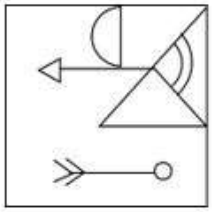

✘ 2.
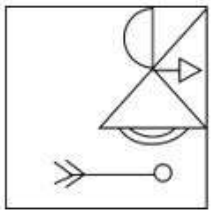

✘ 3.
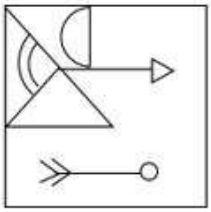

✘ 4.
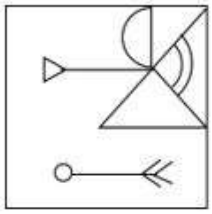

Question ID : **630680318346**
Option 1 ID : **6306801238461**
Option 2 ID : **6306801238462**
Option 3 ID : **6306801238464**
Option 4 ID : **6306801238463**
Status : **Answered**
Chosen Option : **1**

FREE! Download SSC CGL, CHSL E-BOOKS CLICK HERE

CICK TO DOWNLOAD : SSC CGL TIER-1 PDF NOTES

Q.11 यदि निम्नलिखित समीकरण में '+' और '-' को आपस में बदल दिया जाए और '×' और '÷' को आपस में बदल दिया जाए, तो प्रश्न चिह्न (?) के स्थान पर कौन-सी संख्या आएगी?

41 – 54 × 6 ÷ 9 + 7 = ?

Ans
1. 108
2. 104
3. 119
4. 115 ✔

Question ID : **630680163582**
Option 1 ID : **630680633513**
Option 2 ID : **630680633515**
Option 3 ID : **630680633514**
Option 4 ID : **630680633512**
Status : **Answered**
Chosen Option : **4**

Q.12 उस विकल्प का चयन कीजिए जो उन अक्षरों को प्रदर्शित करता है जिन्हें नीचे दिए गए रिक्त स्थानों में बाएं से दाएं क्रमिक रूप से रखने पर अक्षर श्रृंखला पूर्ण हो जाएगी।

_ C _ W _ _ _ C _ W _ _

Ans
1. CWCWWCCW
2. WWCWWWCW ✔
3. WCCWWWCC
4. CCWWCCWW

Question ID : **630680262384**
Option 1 ID : **6306801019175**
Option 2 ID : **6306801019176**
Option 3 ID : **6306801019177**
Option 4 ID : **6306801019178**
Status : **Answered**
Chosen Option : **2**

FREE! Download SSC CGL, CHSL E-BOOKS CLICK HERE

CICK TO DOWNLOAD : SSC CGL TIER-1 PDF NOTES

Q.13 निम्नलिखित श्रृंखला को जारी रखने के लिए प्रश्न चिह्न (?) के स्थान पर कौन-सी आकृति आनी चाहिए?

B	D	X	X	V	B	B	3	=	=	L	B	?
	=			T			V			T		
3	T	V	=	3	D	D	T	L	V	D	3	

Ans

✗ 1.

B	D	V
	L	
3	T	=

✗ 2.

4	T	=
	D	
B	L	V

✗ 3.

B	T	3
	D	
=	L	V

✓ 4.

B	D	V
	L	
3	T	4

Question ID : **630680214430**
Option 1 ID : **630680831753**
Option 2 ID : **630680831752**
Option 3 ID : **630680831754**
Option 4 ID : **630680831751**
Status : **Answered**
Chosen Option : **4**

Q.14 उस विकल्प का चयन कीजिए जो पांचवें पद से उसी प्रकार संबंधित है जिस प्रकार दूसरा पद पहले पद से और चौथा पद तीसरे पद से संबंधित है।
TRAINER : VTCIQHU :: RADIANT : TCFIDQW :: CUSHION : ?

Ans

✗ 1. EXUHLRQ

✗ 2. FWUHLRQ

✗ 3. FXUHLRQ

✓ 4. EWUHLRQ

Question ID : **630680416219**
Option 1 ID : **6306801623640**
Option 2 ID : **6306801623641**
Option 3 ID : **6306801623639**
Option 4 ID : **6306801623642**
Status : **Answered**
Chosen Option : **4**

FREE! Download SSC CGL, CHSL E-BOOKS CLICK HERE

CICK TO DOWNLOAD : SSC CGL TIER-1 PDF NOTES

Q.15 निम्नलिखित में से कौन-सा पद दी गई श्रृंखला में प्रश्न-चिह्न (?) का स्थान लेगा?
DBOI, FEQL, ?, JKUR, LNWU

Ans
✗ 1. HISO
✗ 2. IHSP
✗ 3. HISP
✓ 4. HHSO

Question ID : **630680416901**
Option 1 ID : **6306801626370**
Option 2 ID : **6306801626368**
Option 3 ID : **6306801626367**
Option 4 ID : **6306801626369**
Status : **Answered**
Chosen Option : **4**

Q.16 उस विकल्प का चयन कीजिए जिसमें संख्याओं के मध्य वही संबंध है जो नीचे दिए गए युग्म की संख्याओं के मध्य है।
(ध्यान दें: संख्याओं को उनके घटक अंकों में विभाजित किए बिना, पूर्ण संख्याओं पर संक्रियाएं की जानी चाहिए। उदाहरण के लिए 13 को लें- 13 पर की जाने वाली संक्रियाएं जैसे जोड़ना/ घटाना/ गुणा करना आदि केवल 13 पर की जा सकती हैं। 13 को 1 और 3 में तोड़ना और फिर 1 और 3 पर गणितीय संक्रियाएं करने की अनुमति नहीं है।)

186 : 103
156 : 73

Ans
✗ 1. 83 : 1
✗ 2. 119 : 35
✓ 3. 95 : 12
✗ 4. 208 : 127

Question ID : **630680326561**
Option 1 ID : **6306801270330**
Option 2 ID : **6306801270332**
Option 3 ID : **6306801270329**
Option 4 ID : **6306801270331**
Status : **Answered**
Chosen Option : **3**

Q.17 दिए गए विकल्पों में से उस संख्या का चयन कीजिए, जो निम्नलिखित श्रृंखला में प्रश्न-चिह्न (?) को प्रतिस्थापित कर सकती है।
3, 20, 121, 604, 2417, ?

Ans
✗ 1. 7300
✓ 2. 7250
✗ 3. 7200
✗ 4. 7275

Question ID : **630680411850**
Option 1 ID : **6306801606235**
Option 2 ID : **6306801606237**
Option 3 ID : **6306801606236**
Option 4 ID : **6306801606238**
Status : **Answered**
Chosen Option : **2**

FREE! Download SSC CGL, CHSL E-BOOKS CLICK HERE

CICK TO DOWNLOAD : SSC CGL TIER-1 PDF NOTES

Q.18 विकल्पों में दी गई उस आकृति की पहचान कीजिए, जिसे प्रश्न चिह्न (?) के स्थान पर रखने पर श्रृंखला तार्किक रूप से पूरी हो जाएगी।

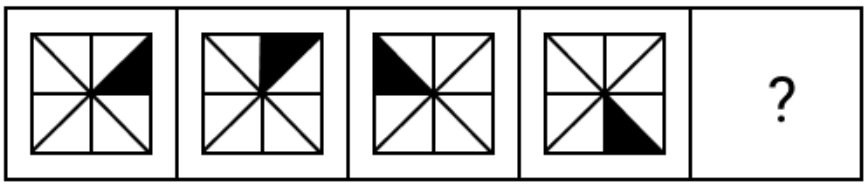

Ans

✗ 1.
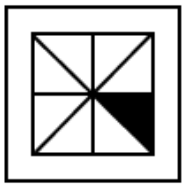

✗ 2.
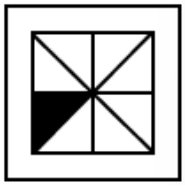

✗ 3.
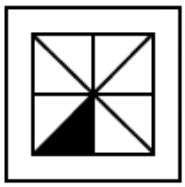

✓ 4.
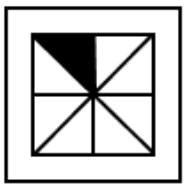

Question ID : **630680470637**
Option 1 ID : **6306801838319**
Option 2 ID : **6306801838320**
Option 3 ID : **6306801838322**
Option 4 ID : **6306801838321**
Status : **Answered**
Chosen Option : **4**

FREE! Download SSC CGL, CHSL E-BOOKS CLICK HERE

CICK TO DOWNLOAD : SSC CGL TIER-1 PDF NOTES

Q.19 तीन कथनों के बाद तीन निष्कर्ष I, II और III दिए गए हैं। आपको इन कथनों को सत्य मानना है, भले ही वे सामान्य रूप से ज्ञात तथ्यों से भिन्न प्रतीत होते हों। निर्धारित करें कि दिए गए निष्कर्षों में से कौन-सा/से निष्कर्ष दिए गए कथनों का तार्किक रूप से अनुसरण करता है/करते हैं।

कथन:
सभी पेन, पेज हैं।
कुछ पेज, पिन हैं।
कुछ पिन, बोर्ड हैं।

निष्कर्ष:
(I) कुछ पिन, पेन हैं।
(II) कुछ बोर्ड, पेज हैं।
(III) कुछ पेन, बोर्ड हैं।

Ans
✔ 1. कोई भी निष्कर्ष अनुसरण नहीं करता है।
✘ 2. या तो निष्कर्ष I अनुसरण करता है या निष्कर्ष III अनुसरण करता है।
✘ 3. केवल निष्कर्ष I अनुसरण करता है।
✘ 4. केवल निष्कर्ष II अनुसरण करता है।

Question ID : **630680416197**
Option 1 ID : **6306801623554**
Option 2 ID : **6306801623553**
Option 3 ID : **6306801623551**
Option 4 ID : **6306801623552**
Status : **Answered**
Chosen Option : **1**

Q.20 एक निश्चित कूट भाषा में, 'BUZZY' को '10' के रूप में कूटबद्ध किया जाता है और 'KING' को '8' के रूप में कूटबद्ध किया जाता है। उसी भाषा में 'ABROAD' को किस प्रकार कूटबद्ध किया जाएगा?

Ans
✔ 1. 12
✘ 2. 10
✘ 3. 7
✘ 4. 9

Question ID : **630680172755**
Option 1 ID : **630680669422**
Option 2 ID : **630680669423**
Option 3 ID : **630680669420**
Option 4 ID : **630680669421**
Status : **Answered**
Chosen Option : **1**

FREE! Download SSC CGL, CHSL E-BOOKS CLICK HERE

CICK TO DOWNLOAD : SSC CGL TIER-1 PDF NOTES

Q.21 नीचे एक ही पासे की दो अलग-अलग स्थितियाँ दी गई हैं। संख्या 1 वाले फलक के विपरीत फलक पर कौन-सी संख्या है?

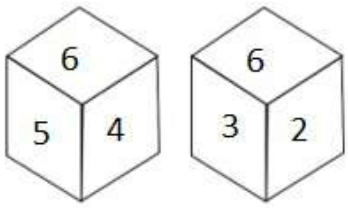

Ans
1. 5
2. 3
3. 4
4. 6

Question ID : **630680313769**
Option 1 ID : **6306801220919**
Option 2 ID : **6306801220917**
Option 3 ID : **6306801220918**
Option 4 ID : **6306801220920**
Status : **Answered**
Chosen Option : **4**

Q.22 दिए गए कथनों और निष्कर्षों को ध्यानपूर्वक पढ़िए। आपको दिए गए कथनों को सत्य मानना है, भले ही वे सामान्यतः ज्ञात तथ्यों से भिन्न प्रतीत होते हों। आपको यह तय करना है कि कौन-सा/से निष्कर्ष दिए गए कथनों का तार्किक रूप से अनुसरण करता है/करते हैं।
कथन:
सभी सेब, आम हैं।
सभी आम, नींबू हैं।
सभी नींबू, कीवी हैं।
निष्कर्ष:
(I) सभी सेब, नींबू हैं।
(II) सभी आम, कीवी हैं।

Ans
1. न तो निष्कर्ष I अनुसरण करता है और न ही II अनुसरण करता है।
2. केवल निष्कर्ष II अनुसरण करता है।
3. केवल निष्कर्ष I अनुसरण करता है।
4. निष्कर्ष I और II दोनों अनुसरण करते हैं।

Question ID : **630680390224**
Option 1 ID : **6306801521341**
Option 2 ID : **6306801521339**
Option 3 ID : **6306801521338**
Option 4 ID : **6306801521340**
Status : **Answered**
Chosen Option : **4**

FREE! Download SSC CGL, CHSL E-BOOKS CLICK HERE

CICK TO DOWNLOAD : SSC CGL TIER-1 PDF NOTES

Q.23 दी गई आकृति में कितने त्रिभुज हैं?

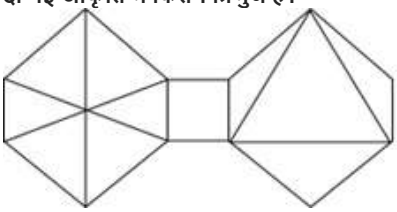

Ans
✗ 1. 12
✗ 2. 9
✓ 3. 10
✗ 4. 11

Question ID : **630680287560**
Option 1 ID : **6306801118150**
Option 2 ID : **6306801118147**
Option 3 ID : **6306801118148**
Option 4 ID : **6306801118149**
Status : **Answered**
Chosen Option : **3**

Q.24 'अतिव्ययी' (Lavish), 'मिताहारी' (Austere) से उसी प्रकार संबंधित है, जिस प्रकार 'पक्षपातपूर्ण' (Prejudiced) '_____' से संबंधित है।
(शब्दों को सार्थक हिंदी शब्द माना जाना चाहिए और शब्दों को अक्षरों की संख्या/व्यंजनों/स्वरों की संख्या के आधार पर एक दूसरे से संबंधित नहीं किया जाना चाहिए।)

Ans
✗ 1. समझौताकारी (Compromised)
✓ 2. निष्पक्ष (Impartial)
✗ 3. विचारपूर्ण (Thoughtful)
✗ 4. सावधान (Careful)

Question ID : **630680416706**
Option 1 ID : **6306801625589**
Option 2 ID : **6306801625590**
Option 3 ID : **6306801625587**
Option 4 ID : **6306801625588**
Status : **Answered**
Chosen Option : **2**

Q.25 एक निश्चित कूट भाषा में, 'VAIN' को 'OKBY' लिखा जाता है और 'VAST' को 'UUBY' लिखा जाता है। इसी कूट भाषा में 'VERB' को किस प्रकार लिखा जाएगा?

Ans
✗ 1. CFTY
✗ 2. CFYT
✗ 3. CTYF
✓ 4. CTFY

Question ID : **630680416243**
Option 1 ID : **6306801623737**
Option 2 ID : **6306801623738**
Option 3 ID : **6306801623736**
Option 4 ID : **6306801623735**
Status : **Answered**
Chosen Option : **4**

Section : **General Awareness**

FREE! Download SSC CGL, CHSL E-BOOKS CLICK HERE

CICK TO DOWNLOAD : SSC CGL TIER-1 PDF NOTES

Q.1 जुलाई, 2021 के दौरान, निम्नलिखित में से किस मंत्रालय ने NIPUN भारत योजना का शुभारंभ किया?

Ans
- ✗ 1. स्वास्थ्य एवं परिवार कल्याण मंत्रालय
- ✗ 2. कृषि एवं किसान मंत्रालय
- ✗ 3. कॉर्पोरेट कार्य मंत्रालय
- ✓ 4. शिक्षा मंत्रालय

Question ID : **630680100090**
Option 1 ID : **630680389058**
Option 2 ID : **630680389059**
Option 3 ID : **630680389056**
Option 4 ID : **630680389057**
Status : **Answered**
Chosen Option : **4**

Q.2 टैक्सस वालिचियाना (Taxus wallichiana) जुक्क (हिमालयी यू) एक औषधीय पौधा है जो निम्नलिखित में से किस राज्य में पाया जाता है?

Ans
- ✓ 1. हिमाचल प्रदेश
- ✗ 2. बिहार
- ✗ 3. झारखंड
- ✗ 4. गोवा

Question ID : **630680302664**
Option 1 ID : **6306801177322**
Option 2 ID : **6306801177323**
Option 3 ID : **6306801177325**
Option 4 ID : **6306801177324**
Status : **Answered**
Chosen Option : **1**

Q.3 स्तंभ A में दी गई अवधारणाओं को स्तंभ B में दिए गए उनसे संबंधित विवरण के साथ सुमेलित कीजिए।

स्तंभ A	स्तंभ B
a. अवमूल्यन	1. विनिमय की बाजार दर में गिरावट
b. मूल्यह्रास	2. घरेलू मुद्रा का संकुचन
c. अपस्फीति	3. विदेशी मुद्रा नियंत्रण विनियमन
d. विनिमय नियंत्रण	4. आयात का संकुचन
	5. मुद्रा के बाह्य मूल्य में आधिकारिक कमी

Ans
- ✗ 1. a-2, b-1, c-4, d-3
- ✓ 2. a-5, b-1, c-2, d-3
- ✗ 3. a-5, b-3, c-2, d-1
- ✗ 4. a-2, b-3, c-4, d-1

Question ID : **630680323663**
Option 1 ID : **6306801259156**
Option 2 ID : **6306801259153**
Option 3 ID : **6306801259155**
Option 4 ID : **6306801259154**
Status : **Answered**
Chosen Option : **2**

FREE! Download SSC CGL, CHSL E-BOOKS CLICK HERE

CICK TO DOWNLOAD : SSC CGL TIER-1 PDF NOTES

Q.4 निम्नलिखित में से किसने भारतीय संविधान की संशोधित विशेषता की प्रशंसा करते हुए कहा था कि 'संशोधन प्रक्रिया में यह विविधता बुद्धिमानी है लेकिन बहुत कम पाई जाती है'?

Ans
- ✗ 1. ग्रैनविले ऑस्टिन (Granville Austin)
- ✗ 2. इवोर जेनिंग्स (Ivor Jennings)
- ✗ 3. एचएम सीरवई (HM Seervai)
- ✓ 4. के सी व्हीरे (K C Wheare)

Question ID : **630680282980**
Option 1 ID : **6306801100051**
Option 2 ID : **6306801100052**
Option 3 ID : **6306801100054**
Option 4 ID : **6306801100053**
Status : **Not Attempted and Marked For Review**
Chosen Option : **--**

Q.5 जल निकायों के संदर्भ में, लघु ज्वार भाटा कब आते हैं?

Ans
- ✗ 1. जब महाद्वीपों द्वारा बहुत अधिक हस्तक्षेप होता है।
- ✗ 2. जब पृथ्वी, चंद्रमा और सूर्य एक सीधी रेखा में आ जाते हैं
- ✗ 3. जब सूर्य और चंद्रमा विपरीत दिशाओं में होते हैं
- ✓ 4. जब सूर्य और चंद्रमा एक दूसरे के समकोण पर होते हैं

Question ID : **63068092591**
Option 1 ID : **630680359094**
Option 2 ID : **630680359096**
Option 3 ID : **630680359097**
Option 4 ID : **630680359095**
Status : **Answered**
Chosen Option : **2**

Q.6 निम्नलिखित में से किस शहर में महात्मा गांधी ने ब्रिटिश बागान मालिकों द्वारा थोपी गई नील की खेती के खिलाफ किसान आंदोलन का नेतृत्व किया था?

Ans
- ✗ 1. खेड़ा
- ✓ 2. चंपारण
- ✗ 3. बारदोली
- ✗ 4. गोरखपुर

Question ID : **630680412379**
Option 1 ID : **6306801608342**
Option 2 ID : **6306801608339**
Option 3 ID : **6306801608340**
Option 4 ID : **6306801608341**
Status : **Answered**
Chosen Option : **2**

FREE! Download SSC CGL, CHSL E-BOOKS CLICK HERE

CICK TO DOWNLOAD : SSC CGL TIER-1 PDF NOTES

Q.7 उच्च न्यायालय में न्यायाधीश के रूप में सेवाएं देने वाली पहली भारतीय महिला अन्ना चांडी किस उच्च न्यायालय में नियुक्त थीं?

Ans
- ✗ 1. आंध्र प्रदेश
- ✗ 2. पश्चिम बंगाल
- ✓ 3. केरल
- ✗ 4. तमिलनाडु

Question ID : **630680413021**
Option 1 ID : **6306801610909**
Option 2 ID : **6306801610910**
Option 3 ID : **6306801610908**
Option 4 ID : **6306801610907**
Status : **Answered**
Chosen Option : **1**

Q.8 लेंस की ऑप्टिकल पॉवर (प्रकाशीय शक्ति) के लिए माप की इकाई क्या है?

Ans
- ✗ 1. कटल
- ✗ 2. रेडियन
- ✗ 3. योट्टा
- ✓ 4. डायोप्टर

Question ID : **630680295292**
Option 1 ID : **6306801148894**
Option 2 ID : **6306801148893**
Option 3 ID : **6306801148895**
Option 4 ID : **6306801148892**
Status : **Answered**
Chosen Option : **4**

Q.9 निम्नलिखित में से कौन-सा कप/ट्रॉफी भारतीय घरेलू क्रिकेट से संबंधित नहीं है?

Ans
- ✓ 1. डूरंड कप
- ✗ 2. दलीप ट्रॉफी
- ✗ 3. देवधर ट्रॉफी
- ✗ 4. रणजी ट्रॉफी

Question ID : **630680510803**
Option 1 ID : **6306801996342**
Option 2 ID : **6306801996344**
Option 3 ID : **6306801996343**
Option 4 ID : **6306801996345**
Status : **Answered**
Chosen Option : **1**

FREE! Download SSC CGL, CHSL E-BOOKS CLICK HERE

CICK TO DOWNLOAD : SSC CGL TIER-1 PDF NOTES

Q.10 जब हैलोऐल्केन और एरिल और विनाइल हैलाइड मैग्नीशियम धातु के साथ अभिक्रिया करते हैं तो वे किस अभिकर्मक का उत्पादन करते हैं?

Ans
✗ 1. फेलिंग अभिकर्मक (Fehling reagent)
✓ 2. ग्रिग्नार्ड अभिकर्मक (Grignard reagent)
✗ 3. हिंसबर्ग अभिकर्मक (Hinsberg reagent)
✗ 4. टॉलेंस अभिकर्मक (Tollens' reagent)

Question ID : **63068051561**
Option 1 ID : **630680198480**
Option 2 ID : **630680198479**
Option 3 ID : **630680198481**
Option 4 ID : **630680198478**
Status : **Not Attempted and Marked For Review**
Chosen Option : **--**

Q.11 निम्नलिखित में से कौन दिल्ली सल्तनत का अंतिम सुल्तान था?

Ans
✗ 1. फ़िरोज़ शाह तुग़लक
✓ 2. इब्राहिम लोदी
✗ 3. मुहम्मद बिन तुगलक
✗ 4. सिकंदर लोदी

Question ID : **630680412412**
Option 1 ID : **6306801608474**
Option 2 ID : **6306801608472**
Option 3 ID : **6306801608473**
Option 4 ID : **6306801608471**
Status : **Answered**
Chosen Option : **4**

Q.12 निम्नलिखित में से किस युद्ध को भारत में ब्रिटिश राज की औपचारिक शुरुआत माना जाता है?

Ans
✓ 1. प्लासी का युद्ध
✗ 2. बक्सर का युद्ध
✗ 3. प्रथम कर्नाटक युद्ध
✗ 4. वांडिवाश का युद्ध

Question ID : **630680511533**
Option 1 ID : **6306801999255**
Option 2 ID : **6306801999256**
Option 3 ID : **6306801999254**
Option 4 ID : **6306801999257**
Status : **Answered**
Chosen Option : **3**

FREE! Download SSC CGL, CHSL E-BOOKS CLICK HERE

CICK TO DOWNLOAD : SSC CGL TIER-1 PDF NOTES

Q.13 भारतीय संविधान का कौन-सा अनुच्छेद स्पष्ट रूप से यह व्यवस्था प्रदान करता है कि राष्ट्रपति पुनर्निर्वाचन के लिए योग्य है?

Ans
- ✗ 1. अनुच्छेद 56
- ✓ 2. अनुच्छेद 57
- ✗ 3. अनुच्छेद 59
- ✗ 4. अनुच्छेद 58

Question ID : **630680305541**
Option 1 ID : **6306801188537**
Option 2 ID : **6306801188538**
Option 3 ID : **6306801188540**
Option 4 ID : **6306801188539**
Status : **Answered**
Chosen Option : **2**

Q.14 जगन्नाथ मंदिर, पुरी में किन तीन भगवानों की मूर्तियाँ स्थापित हैं?

Ans
- ✗ 1. राम, लक्ष्मण और जानकी
- ✓ 2. जगन्नाथ, बलभद्र और सुभद्रा
- ✗ 3. ब्रह्मा, विष्णु और महेश
- ✗ 4. राधा, कृष्ण और बलराम

Question ID : **630680158749**
Option 1 ID : **630680614488**
Option 2 ID : **630680614491**
Option 3 ID : **630680614490**
Option 4 ID : **630680614489**
Status : **Answered**
Chosen Option : **2**

Q.15 मछलियों के हृदय में कितने प्रकोष्ठ होते हैं?

Ans
- ✓ 1. 2
- ✗ 2. 3
- ✗ 3. 1
- ✗ 4. 4

Question ID : **630680517134**
Option 1 ID : **6306802020933**
Option 2 ID : **6306802020934**
Option 3 ID : **6306802020932**
Option 4 ID : **6306802020935**
Status : **Answered**
Chosen Option : **2**

Q.16 गंगू बाई हंगल और प्रभा अत्रे _____ घराने की प्रतिपादक थीं।

Ans
- ✗ 1. जयपुर
- ✗ 2. रामपुर
- ✓ 3. किराना
- ✗ 4. मेवाती

Question ID : **630680409220**
Option 1 ID : **6306801595710**
Option 2 ID : **6306801595712**
Option 3 ID : **6306801595711**
Option 4 ID : **6306801595709**
Status : **Answered**
Chosen Option : **3**

FREE! Download SSC CGL, CHSL E-BOOKS CLICK HERE

SSC CGL (Tier-1) STUDY NOTES

- 100% CGL Exam Syllabus Covered
- 12 Books, 1300+ Pages
- 5600+ MCQs
- Previous Year Papers & Mocks
- 1 Year Current Affairs
- Support & Guidance

FREE SHIPPING

50% OFF

100% SAFE

SSCPORTAL.IN

SSC CGL

PDF NOTES

100% Syllabus | 1300+ Pages

50% OFF

CLICK HERE

CICK TO DOWNLOAD : SSC CGL TIER-1 PDF NOTES

Q.17 चित्तानी रामचंद्र हेगड़े निम्नलिखित में से किस नृत्य से संबंधित थे?

Ans
- ✗ 1. छऊ नृत्य (Chhau dance)
- ✗ 2. छपेली नृत्य (Chappeli dance)
- ✗ 3. हुत्तारी नृत्य (Huttari dance)
- ✓ 4. यक्षगान नृत्य (Yakshagana dance)

Question ID : **630680402666**
Option 1 ID : **6306801570262**
Option 2 ID : **6306801570263**
Option 3 ID : **6306801570261**
Option 4 ID : **6306801570264**
Status : **Answered**
Chosen Option : **1**

Q.18 2022 तक की स्थिति के अनुसार निम्नलिखित में से किस भारतीय राज्य में सबसे कम परिचालित हवाई अड्डे हैं?

Ans
- ✗ 1. महाराष्ट्र
- ✗ 2. बिहार
- ✓ 3. मिज़ोरम
- ✗ 4. कर्नाटक

Question ID : **630680283352**
Option 1 ID : **6306801101531**
Option 2 ID : **6306801101532**
Option 3 ID : **6306801101533**
Option 4 ID : **6306801101534**
Status : **Answered**
Chosen Option : **3**

Q.19 भारत सरकार ने उद्योगों की नौ श्रेणियों में भारतीय रिज़र्व बैंक द्वारा _____% तक की एफडीआई (FDI) की स्वचालित स्वीकृति की अनुमति दी।

Ans
- ✗ 1. 41
- ✗ 2. 51
- ✗ 3. 60
- ✓ 4. 74

Question ID : **6306801048057**
Option 1 ID : **6306804114275**
Option 2 ID : **6306804114274**
Option 3 ID : **6306804114277**
Option 4 ID : **6306804114276**
Status : **Not Attempted and Marked For Review**
Chosen Option : **--**

FREE! Download SSC CGL, CHSL E-BOOKS CLICK HERE

CICK TO DOWNLOAD : SSC CGL TIER-1 PDF NOTES

Q.20 वैदिक जीवन की आश्रम प्रणाली के अनुसार, निम्नलिखित में से जीवन का तीसरा चरण कौन-सा था?

Ans
- ✗ 1. गृहस्थ
- ✗ 2. सन्यास
- ✗ 3. ब्रह्मचर्य
- ✓ 4. वानप्रस्थ

Question ID : **630680412491**
Option 1 ID : **6306801608788**
Option 2 ID : **6306801608790**
Option 3 ID : **6306801608787**
Option 4 ID : **6306801608789**
Status : **Answered**
Chosen Option : **4**

Q.21 2023 में नीति आयोग की रिपोर्ट के अनुसार, भारत में निम्नलिखित में से किस राज्य में कुल जनसंख्या का सबसे कम प्रतिशत बहुआयामी गरीब का है?

Ans
- ✗ 1. सिक्किम
- ✓ 2. केरल
- ✗ 3. गोवा
- ✗ 4. उत्तराखंड

Question ID : **630680409677**
Option 1 ID : **6306801597540**
Option 2 ID : **6306801597538**
Option 3 ID : **6306801597537**
Option 4 ID : **6306801597539**
Status : **Answered**
Chosen Option : **2**

Q.22 निम्नलिखित में से कौन-सी टेबल टेनिस विश्व चैम्पियनशिप प्रतियोगिता भारत में आयोजित की गई थी?

Ans
- ✗ 1. 20वीं विश्व चैंपियनशिप, 1953
- ✓ 2. 19वीं विश्व चैंपियनशिप, 1952
- ✗ 3. 17वीं विश्व चैंपियनशिप, 1950
- ✗ 4. 18वीं विश्व चैंपियनशिप, 1951

Question ID : **630680510760**
Option 1 ID : **6306801996173**
Option 2 ID : **6306801996172**
Option 3 ID : **6306801996170**
Option 4 ID : **6306801996171**
Status : **Not Attempted and Marked For Review**
Chosen Option : **--**

FREE! Download SSC CGL, CHSL E-BOOKS CLICK HERE

CICK TO DOWNLOAD : SSC CGL TIER-1 PDF NOTES

Q.23 तबला वादक उस्ताद ज़ाकिर हुसैन को 2023 में भारत सरकार द्वारा निम्नलिखित में से किस पुरस्कार से सम्मानित किया गया?

Ans
- ✗ 1. पद्म भूषण
- ✗ 2. पद्म श्री
- ✗ 3. भारत रत्न
- ✓ 4. पद्म विभूषण

Question ID : **630680415796**
Option 1 ID : **6306801621953**
Option 2 ID : **6306801621954**
Option 3 ID : **6306801621951**
Option 4 ID : **6306801621952**
Status : **Answered**
Chosen Option : **4**

Q.24 निम्नलिखित प्रसिद्ध भारतीय एथलीटों में से किसने सितंबर 2022 में ज्यूरिख डायमंड लीग फाइनल 2022 में जीत दर्ज की थी?

Ans
- ✗ 1. मीराबाई चानू
- ✗ 2. पी.टी. उषा
- ✓ 3. नीरज चोपड़ा
- ✗ 4. बजरंग पूनिया

Question ID : **630680339489**
Option 1 ID : **6306801320525**
Option 2 ID : **6306801320528**
Option 3 ID : **6306801320527**
Option 4 ID : **6306801320526**
Status : **Answered**
Chosen Option : **3**

Q.25 निम्नलिखित में से कौन-सा युग्म गलत सुमेलित है?

Ans
- ✗ 1. राइबोसोम: प्रोटीन का कारखाना
- ✗ 2. लाइसोसोम: आत्मघाती थैली
- ✗ 3. माइटोकॉन्ड्रिया: सेल का पावर हाउस
- ✓ 4. नाभिक: लिपिड चयापचय

Question ID : **630680199640**
Option 1 ID : **630680774169**
Option 2 ID : **630680774168**
Option 3 ID : **630680774167**
Option 4 ID : **630680774170**
Status : **Answered**
Chosen Option : **4**

Section : **Quantitative Aptitude**

FREE! Download SSC CGL, CHSL E-BOOKS CLICK HERE

CICK TO DOWNLOAD : SSC CGL TIER-1 PDF NOTES

Q.1 50 और 76 के बीच आने वाली अभाज्य संख्याओं का औसत ज्ञात करें।

Ans
✔ 1. 64
✘ 2. 60
✘ 3. 62
✘ 4. 66

Question ID : **630680397727**
Option 1 ID : **6306801550924**
Option 2 ID : **6306801550922**
Option 3 ID : **6306801550923**
Option 4 ID : **6306801550925**
Status : **Answered**
Chosen Option : **1**

Q.2 निम्नलिखित को सरल कीजिए।

$$1020 \div \left[\frac{4}{3} \text{ of } (26+4) - 11\frac{2}{3}\right]$$

Ans
✘ 1. 31
✘ 2. 17
✔ 3. 36
✘ 4. 28

Question ID : **630680427993**
Option 1 ID : **6306801670018**
Option 2 ID : **6306801670016**
Option 3 ID : **6306801670019**
Option 4 ID : **6306801670017**
Status : **Answered**
Chosen Option : **3**

Q.3 निम्न तालिका 2016 से 2020 तक पाँच निर्माताओं की कारों की बिक्री दर्शाती है।
(सभी आँकड़े सैकड़ा में हैं।)

निर्माता	2016	2017	2018	2019	2020
M_1	180	190	200	210	220
M_2	160	170	180	190	200
M_3	190	200	210	220	230
M_4	200	210	220	230	240
M_5	210	220	230	240	250

वर्ष 2016 से 2019 के दौरान निर्माता M_2 की कुल बिक्री संख्या और निर्माता M_4 की कुल बिक्री संख्या के बीच कितना अंतर है?

Ans
✘ 1. 18000
✘ 2. 12000
✔ 3. 16000
✘ 4. 14000

Question ID : **630680428170**
Option 1 ID : **6306801670727**
Option 2 ID : **6306801670724**
Option 3 ID : **6306801670726**
Option 4 ID : **6306801670725**
Status : **Answered**
Chosen Option : **3**

FREE! Download SSC CGL, CHSL E-BOOKS CLICK HERE

CICK TO DOWNLOAD : SSC CGL TIER-1 PDF NOTES

Q.4 एक पुलिसकर्मी 200 m की दूरी से एक चोर को देखता है। चोर भागने लगता है और पुलिसकर्मी उसका पीछा करता है। चोर और पुलिसकर्मी क्रमशः 10 km/h और 11 km/h की चाल से भागते हैं। 9 मिनट बाद उनके बीच की दूरी (m में) कितनी होगी?

Ans
- ✗ 1. 60
- ✓ 2. 50
- ✗ 3. 30
- ✗ 4. 40

Question ID : **630680428633**
Option 1 ID : **6306801672578**
Option 2 ID : **6306801672579**
Option 3 ID : **6306801672576**
Option 4 ID : **6306801672577**
Status : **Answered**
Chosen Option : **2**

Q.5 यदि दो समरूप त्रिभुजों के क्षेत्रफलों का अनुपात 25 : 144 है, तो उनकी संगत भुजाओं का अनुपात क्या होगा?

Ans
- ✗ 1. 5 : 144
- ✗ 2. 12 : 5
- ✓ 3. 5 : 12
- ✗ 4. 25 : 12

Question ID : **630680196077**
Option 1 ID : **630680760698**
Option 2 ID : **630680760695**
Option 3 ID : **630680760696**
Option 4 ID : **630680760697**
Status : **Answered**
Chosen Option : **3**

Q.6 △ABC और △RPQ सर्वांगसम हैं, तो △ABC की वह भुजा ज्ञात कीजिए जो PQ के संगत है।

Ans
- ✓ 1. BC
- ✗ 2. AR
- ✗ 3. AB
- ✗ 4. CA

Question ID : **630680387766**
Option 1 ID : **6306801511696**
Option 2 ID : **6306801511699**
Option 3 ID : **6306801511697**
Option 4 ID : **6306801511698**
Status : **Answered**
Chosen Option : **1**

FREE! Download SSC CGL, CHSL E-BOOKS CLICK HERE

CICK TO DOWNLOAD : SSC CGL TIER-1 PDF NOTES

Q.7 $(\text{cosec}56^\circ \cos 34^\circ - \cos 59^\circ \text{cosec}31^\circ)$ का मान ज्ञात कीजिए।

Ans
✗ 1. 2
✗ 2. 1
✓ 3. 0
✗ 4. -1

Question ID : **630680403307**
Option 1 ID : **6306801572728**
Option 2 ID : **6306801572726**
Option 3 ID : **6306801572727**
Option 4 ID : **6306801572729**
Status : **Answered**
Chosen Option : **3**

Q.8 यदि 0.4x + 0.16y = 1.7 और 0.3x + 0.12y = 3.4 है, तो निम्नलिखित में से कौन सा कथन सही है?

Ans
✗ 1. निकाय का अद्वितीय हल है।
✓ 2. निकाय का कोई हल नहीं है।
✗ 3. निकाय के अपरिमित रूप से अनेक हल हैं।
✗ 4. निकाय में परिमित रूप से अनेक हल हैं लेकिन अद्वितीय नहीं हैं।

Question ID : **630680194609**
Option 1 ID : **630680754963**
Option 2 ID : **630680754962**
Option 3 ID : **630680754961**
Option 4 ID : **630680754964**
Status : **Answered**
Chosen Option : **2**

Q.9 एक त्रिभुज △ABC में, AB = AC और ∠A=80° है, तो ∠B ज्ञात कीजिए।

Ans
✓ 1. 50°
✗ 2. 45°
✗ 3. 40°
✗ 4. 80°

Question ID : **630680413270**
Option 1 ID : **6306801611929**
Option 2 ID : **6306801611930**
Option 3 ID : **6306801611928**
Option 4 ID : **6306801611927**
Status : **Answered**
Chosen Option : **1**

FREE! Download SSC CGL, CHSL E-BOOKS CLICK HERE

CICK TO DOWNLOAD : SSC CGL TIER-1 PDF NOTES

Q.10 एक त्रिभुज में $\triangle ABC$ में, $\angle ABC = 90^\circ$ है। यदि $\sin(A) = \frac{1}{2}$, तो $\cos(C)$, किसके बराबर है?

Ans
✔ 1. $\frac{1}{2}$
✘ 2. 1
✘ 3. $\frac{1}{\sqrt{2}}$
✘ 4. $\frac{\sqrt{3}}{2}$

Question ID : **630680526463**
Option 1 ID : **6306802057918**
Option 2 ID : **6306802057919**
Option 3 ID : **6306802057920**
Option 4 ID : **6306802057921**
Status : **Answered**
Chosen Option : **1**

Q.11 ₹8,400 की राशि को साधारण ब्याज की 7% वार्षिक दर पर ₹11,928 होने में कितने वर्ष लगेंगे?

Ans
✘ 1. 8
✔ 2. 6
✘ 3. 2
✘ 4. 5

Question ID : **630680390957**
Option 1 ID : **6306801524228**
Option 2 ID : **6306801524229**
Option 3 ID : **6306801524226**
Option 4 ID : **6306801524227**
Status : **Answered**
Chosen Option : **2**

Q.12 245 और $7\frac{1}{5}$ के माध्यानुपाती को एक सम अभाज्य संख्या से विभाजित किए जाने पर प्राप्त भागफल ज्ञात करें।

Ans
✘ 1. 36
✘ 2. 42
✔ 3. 21
✘ 4. 49

Question ID : **630680428639**
Option 1 ID : **6306801672601**
Option 2 ID : **6306801672603**
Option 3 ID : **6306801672602**
Option 4 ID : **6306801672600**
Status : **Answered**
Chosen Option : **3**

FREE! Download SSC CGL, CHSL E-BOOKS CLICK HERE

CICK TO DOWNLOAD : SSC CGL TIER-1 PDF NOTES

Q.13 सरल कीजिए:

$$\frac{(4.2)^3 - (1.2)^3}{(4.2)^2 + 5.04 + (1.2)^2}$$

Ans
1. 1
2. 5
3. 2
4. 3 ✔

Question ID : **630680413491**
Option 1 ID : **6306801612790**
Option 2 ID : **6306801612791**
Option 3 ID : **6306801612789**
Option 4 ID : **6306801612788**
Status : **Answered**
Chosen Option : **4**

Q.14 S ने R से कुछ राशि उधार ली और उसे 8% ब्याज देने का वादा किया। फिर S ने उधार ली गई राशि को एक योजना में निवेश किया, जिससे उसने ब्याज समेत R के मूलधन का भुगतान करने के बाद 5% का लाभ अर्जित किया। यदि R ने सीधे ऐसी योजना में निवेश किया होता, तो उसको कितने प्रतिशत लाभ होता?

Ans
1. 13.4%
2. 14.4%
3. 13% ✔
4. 14%

Question ID : **630680428764**
Option 1 ID : **6306801673101**
Option 2 ID : **6306801673103**
Option 3 ID : **6306801673100**
Option 4 ID : **6306801673102**
Status : **Answered**
Chosen Option : **1**

Q.15 पाइप A आमतौर पर एक टैंक को 6 घंटे में भरता है। लेकिन टैंक के निचले भाग में रिसाव के कारण, टैंक को भरने में 2 घंटे अतिरिक्त लगते हैं। यदि टैंक भरा हुआ है तो रिसाव के कारण इसे खाली होने में कितना समय लगेगा?

Ans
1. 16 घंटे
2. 12 घंटे
3. 20 घंटे
4. 24 घंटे ✔

Question ID : **630680386864**
Option 1 ID : **6306801508167**
Option 2 ID : **6306801508166**
Option 3 ID : **6306801508169**
Option 4 ID : **6306801508168**
Status : **Answered**
Chosen Option : **4**

FREE! Download SSC CGL, CHSL E-BOOKS CLICK HERE

CICK TO DOWNLOAD : SSC CGL TIER-1 PDF NOTES

Q.16 उस वर्ग का क्षेत्रफल ज्ञात करें, जिसका एक विकर्ण 4.8 m लंबा है।

Ans
✔ 1. 11.52 m^2
✘ 2. 9.5 m^2
✘ 3. 12.5 m^2
✘ 4. 10.5 m^2

Question ID : **630680102080**
Option 1 ID : **630680396678**
Option 2 ID : **630680396676**
Option 3 ID : **630680396679**
Option 4 ID : **630680396677**
Status : **Answered**
Chosen Option : **1**

Q.17 निम्नांकित तालिका स्कूल में अक्षय द्वारा विभिन्न विषयों में प्राप्त अंकों को दर्शाती है। तालिका का अध्ययन करें और उसके बाद पूछे गए प्रश्न का उत्तर दें।

विषय	प्राप्तांक	पूर्णांक
अंग्रेजी	73	100
हिन्दी	56	80
विज्ञान	45	75
गणित	90	125
आईटी	45	60

उसने किस विषय में सबसे अधिक अंक (% में) प्राप्त किए?

Ans
✘ 1. गणित
✘ 2. हिन्दी
✘ 3. अंग्रेजी
✔ 4. आईटी

Question ID : **630680428094**
Option 1 ID : **6306801670421**
Option 2 ID : **6306801670423**
Option 3 ID : **6306801670420**
Option 4 ID : **6306801670422**
Status : **Answered**
Chosen Option : **4**

FREE! Download SSC CGL, CHSL E-BOOKS CLICK HERE

CICK TO DOWNLOAD : SSC CGL TIER-1 PDF NOTES

Q.18 $[\frac{4}{3}\tan^2 60° + 3\cos^2 30° - 2\sec^2 30° - \frac{3}{4}\cot^2 60°] \div [\sin 60° \cos 30° - \cos 60° \sin 30°]$ का मान ज्ञात कीजिए।

Ans

✔ 1. $6\frac{2}{3}$

✘ 2. $4\frac{1}{3}$

✘ 3. $3\frac{1}{2}$

✘ 4. $6\frac{3}{2}$

Question ID : **630680387372**
Option 1 ID : **6306801510177**
Option 2 ID : **6306801510176**
Option 3 ID : **6306801510175**
Option 4 ID : **6306801510174**
Status : **Answered**
Chosen Option : **1**

FREE! Download SSC CGL, CHSL E-BOOKS CLICK HERE

CICK TO DOWNLOAD : SSC CGL TIER-1 PDF NOTES

Q.19 पाँच अलग-अलग कंपनियाँ, P, Q, R, S और T, प्लास्टिक और लकड़ी के बल्ले बनाती हैं। इन बल्लों को ब्रांड A या ब्रांड B के रूप में लेबलित किया जाता है। दी गई तालिका प्रत्येक कंपनी द्वारा निर्मित कुल बल्लों के प्रतिशत के रूप में लकड़ी के बल्लों की संख्या दर्शाती है। यह तालिका, ब्रांड A और ब्रांड B लेबल वाले प्लास्टिक के बल्लों के अनुपात को भी दर्शाती है। प्रत्येक कंपनी 1,00,000 बल्ले बनाती है। इस तालिका का ध्यानपूर्वक अध्ययन कीजिए और निम्नलिखित प्रश्न का उत्तर दीजिए।

कंपनी	लकड़ी के बल्ले	ब्रांड A : ब्रांड B
P	65%	3 : 7
Q	70%	7 : 8
R	60%	19 : 6
S	70%	7 : 8
T	50%	2 : 3

सभी कंपनियों को मिलाकर, ब्रांड B के कुल कितने प्लास्टिक के बल्ले बनाए गए हैं?

Ans
✔ 1. 96,100
✘ 2. 80,500
✘ 3. 90,500
✘ 4. 86,100

Question ID : **630680386654**
Option 1 ID : **6306801507327**
Option 2 ID : **6306801507329**
Option 3 ID : **6306801507326**
Option 4 ID : **6306801507328**
Status : **Answered**
Chosen Option : **1**

Q.20 एक कर्मचारी के वेतन में पहले 25% की वृद्धि की जाती है, फिर 12% की कमी की जाती है। उसके वेतन में प्रतिशत परिवर्तन कितना है?

Ans
✘ 1. 10% कमी
✔ 2. 10% वृद्धि
✘ 3. 13% वृद्धि
✘ 4. 13% कमी

Question ID : **630680397320**
Option 1 ID : **6306801549337**
Option 2 ID : **6306801549339**
Option 3 ID : **6306801549336**
Option 4 ID : **6306801549338**
Status : **Answered**
Chosen Option : **2**

FREE! Download SSC CGL, CHSL E-BOOKS CLICK HERE

CICK TO DOWNLOAD : SSC CGL TIER-1 PDF NOTES

Q.21 व्यंजक $(1.55^2 + 0.55^2 + 1.55 \times 0.55)$ का मान____के बराबर है।

Ans
1. $1.55^2 - 0.55^2$
2. $1.55^2 + 0.55^2$
3. $1.55^3 + 0.55^3$
4. $1.55^3 - 0.55^3$ ✔

Question ID : **630680413481**
Option 1 ID : **6306801612748**
Option 2 ID : **6306801612749**
Option 3 ID : **6306801612750**
Option 4 ID : **6306801612751**
Status : **Answered**
Chosen Option : **4**

Q.22 Δ PQR में, M, N और S क्रमशः भुजाओं PQ, PR और QR के मध्य-बिंदु हैं। यदि Δ PQR का क्षेत्रफल 46 cm^2 है, तो चतुर्भुज MNRQ का क्षेत्रफल (cm^2 में) क्या है?

Ans
1. 39
2. 23
3. 27.6
4. 34.5 ✔

Question ID : **630680421389**
Option 1 ID : **6306801644020**
Option 2 ID : **6306801644019**
Option 3 ID : **6306801644021**
Option 4 ID : **6306801644022**
Status : **Answered**
Chosen Option : **4**

Q.23 एक बल्ले का क्रय मूल्य उसके अंकित मूल्य का 75% है। 15% की छूट देने के बाद लाभ प्रतिशत की गणना करें।

Ans
1. 21.33%
2. 18.16%
3. 13.33% ✔
4. 25.6%

Question ID : **630680135742**
Option 1 ID : **630680525689**
Option 2 ID : **630680525688**
Option 3 ID : **630680525687**
Option 4 ID : **630680525686**
Status : **Answered**
Chosen Option : **3**

FREE! Download SSC CGL, CHSL E-BOOKS CLICK HERE

CICK TO DOWNLOAD : SSC CGL TIER-1 PDF NOTES

Q.24 निम्न बार-ग्राफ जुलाई 2022 से दिसंबर 2022 तक ABC पत्रिका की प्रसार वृद्धि दर्शाता है।

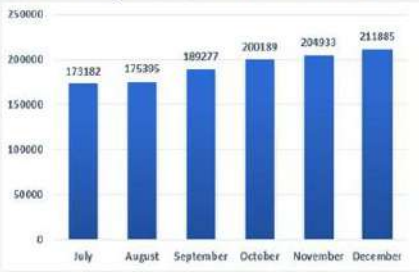

July= जुलाई August=अगस्त September=सितम्बर October=अक्टूबर November=नवम्बर December= दिसम्बर
अक्टूबर से दिसंबर के दौरान एक समान वृद्धि दर थी, जिसका औसत _____ है (एक दशमलव स्थान तक सही)।

Ans
- ✗ 1. 2.4%
- ✓ 2. 2.9%
- ✗ 3. 3.8%
- ✗ 4. 3.2%

Question ID : **630680428178**
Option 1 ID : **6306801670756**
Option 2 ID : **6306801670757**
Option 3 ID : **6306801670759**
Option 4 ID : **6306801670758**
Status : **Answered**
Chosen Option : **1**

Q.25 निम्नलिखित में से कौन सी संख्या 2 और 5 दोनों से विभाज्य है?

Ans
- ✗ 1. 37915
- ✗ 2. 20792
- ✓ 3. 63840
- ✗ 4. 37254

Question ID : **630680121555**
Option 1 ID : **630680471180**
Option 2 ID : **630680471178**
Option 3 ID : **630680471179**
Option 4 ID : **630680471181**
Status : **Answered**
Chosen Option : **3**

Section : **English Comprehension**

Q.1 **Parts of the following sentence have been given as options. Select the option that contains an error.**
Rahul thinks he is as smarter as his friends in the class.

Ans
- ✗ 1. Rahul thinks
- ✓ 2. he is as smarter as
- ✗ 3. in the class
- ✗ 4. his friends

Question ID : **630680514373**
Option 1 ID : **6306802010117**
Option 2 ID : **6306802010118**
Option 3 ID : **6306802010120**
Option 4 ID : **6306802010119**
Status : **Answered**
Chosen Option : **2**

FREE! Download SSC CGL, CHSL E-BOOKS CLICK HERE

CICK TO DOWNLOAD : SSC CGL TIER-1 PDF NOTES

Q.2 **Select the most appropriate meaning of the given idiom.**

Jump the gun

Ans
✗ 1. To start all over again
✓ 2. To do something too soon and too quickly
✗ 3. Using a gun for sports
✗ 4. To stop a process

Question ID : **630680270820**
Option 1 ID : **6306801052468**
Option 2 ID : **6306801052467**
Option 3 ID : **6306801052466**
Option 4 ID : **6306801052469**
Status : **Answered**
Chosen Option : **2**

Q.3 **Select the correctly spelt word.**

Ans
✗ 1. Conscencious
✗ 2. Conscientous
✗ 3. Conscietious
✓ 4. Conscientious

Question ID : **630680409944**
Option 1 ID : **6306801598608**
Option 2 ID : **6306801598605**
Option 3 ID : **6306801598606**
Option 4 ID : **6306801598607**
Status : **Answered**
Chosen Option : **4**

Q.4 **Given below are four jumbled sentences. Select the option that gives their correct logical sequence.**

A. It contains high levels of Vitamin A and D.
B. Cod liver oil is thus used to treat arthritis.
C. This supplement is made from the liver of cod fish.
D. Cod liver oil is a nutritional supplement.

Ans
✗ 1. BACD
✓ 2. DCAB
✗ 3. CBAD
✗ 4. ABCD

Question ID : **630680374760**
Option 1 ID : **6306801460207**
Option 2 ID : **6306801460210**
Option 3 ID : **6306801460209**
Option 4 ID : **6306801460208**
Status : **Answered**
Chosen Option : **2**

FREE! Download SSC CGL, CHSL E-BOOKS CLICK HERE

CICK TO DOWNLOAD : SSC CGL TIER-1 PDF NOTES

Q.5 **Select the most appropriate synonym of the underlined word in the given sentence.**
Layla is the Sultan's consort.

Ans
✗ 1. Foe
✗ 2. Alcoholic
✗ 3. Enemy
✓ 4. Partner

Question ID : **630680158570**
Option 1 ID : **630680613790**
Option 2 ID : **630680613791**
Option 3 ID : **630680613789**
Option 4 ID : **630680613788**
Status : **Answered**
Chosen Option : **4**

Q.6 **Parts of a sentence are given below in jumbled order. Select the option that arranges the parts in the correct sequence to form a meaningful sentence.**
(P) kindness and empathy
(Q) in a world that can be
(O) bring light and positivity
(R) harsh and challenging

Ans
✗ 1. QROP
✗ 2. PORQ
✗ 3. ROQP
✓ 4. QRPO

Question ID : **630680380979**
Option 1 ID : **6306801484906**
Option 2 ID : **6306801484903**
Option 3 ID : **6306801484904**
Option 4 ID : **6306801484905**
Status : **Answered**
Chosen Option : **3**

Q.7 **Select the most appropriate option to fill in the blank.**
Two of the fugitives managed to remain free by adeptly avoiding the_____ of the police.

Ans
✗ 1. discovery
✗ 2. repression
✗ 3. following
✓ 4. pursuit

Question ID : **630680145433**
Option 1 ID : **630680562709**
Option 2 ID : **630680562707**
Option 3 ID : **630680562708**
Option 4 ID : **630680562706**
Status : **Answered**
Chosen Option : **4**

FREE! Download SSC CGL, CHSL E-BOOKS CLICK HERE

CICK TO DOWNLOAD : SSC CGL TIER-1 PDF NOTES

Q.8 **Select the word OPPOSITE in meaning to the given word.**
Deficient

Ans
✔ 1. Ample
✘ 2. Broken
✘ 3. Terrible
✘ 4. Skimpy

Question ID : **630680517432**
Option 1 ID : **6306802022124**
Option 2 ID : **6306802022126**
Option 3 ID : **6306802022127**
Option 4 ID : **6306802022125**
Status : **Answered**
Chosen Option : **1**

Q.9 **Select the option that can be used as a one-word substitute for the given group of words.**

A person who is trained to travel in a spacecraft.

Ans
✘ 1. Alchemist
✔ 2. Astronaut
✘ 3. Anthropologist
✘ 4. Curator

Question ID : **630680414786**
Option 1 ID : **6306801617888**
Option 2 ID : **6306801617887**
Option 3 ID : **6306801617889**
Option 4 ID : **6306801617890**
Status : **Answered**
Chosen Option : **2**

Q.10 **Select the option that expresses the following sentence in active voice.**
The car was repaired by the mechanic.

Ans
✘ 1. The mechanic repairs the car.
✘ 2. The mechanic is repairing the car.
✘ 3. The mechanic has repaired the car.
✔ 4. The mechanic repaired the car.

Question ID : **630680415305**
Option 1 ID : **6306801619967**
Option 2 ID : **6306801619969**
Option 3 ID : **6306801619968**
Option 4 ID : **6306801619970**
Status : **Answered**
Chosen Option : **4**

FREE! Download SSC CGL, CHSL E-BOOKS CLICK HERE

CICK TO DOWNLOAD : SSC CGL TIER-1 PDF NOTES

Q.11 **The following sentence has been divided into parts. One of them may contain an error. Select the part that contains the error from the given options. If you don't find any error, mark 'No error' as your answer.**
Neither my brother nor my brothers-in-law / attended the meeting / as his health is not more good.

Ans
✔ 1. as his health is not more good
✘ 2. Neither my brother nor my brothers-in-law
✘ 3. attended the meeting
✘ 4. No error

Question ID : **630680196357**
Option 1 ID : **630680761809**
Option 2 ID : **630680761807**
Option 3 ID : **630680761808**
Option 4 ID : **630680761810**
Status : **Answered**
Chosen Option : **1**

Q.12 **Select the most appropriate synonym of the given word.**
Jovial

Ans
✘ 1. Solemnity
✔ 2. Cheerful
✘ 3. Miserable
✘ 4. Profane

Question ID : **630680295218**
Option 1 ID : **6306801148599**
Option 2 ID : **6306801148598**
Option 3 ID : **6306801148597**
Option 4 ID : **6306801148596**
Status : **Answered**
Chosen Option : **2**

Q.13 **Select the most appropriate synonym of the given word.**
Merit

Ans
✔ 1. Virtue
✘ 2. Oblique
✘ 3. Residue
✘ 4. Fatigue

Question ID : **630680168488**
Option 1 ID : **630680652564**
Option 2 ID : **630680652567**
Option 3 ID : **630680652566**
Option 4 ID : **630680652565**
Status : **Answered**
Chosen Option : **1**

FREE! Download SSC CGL, CHSL E-BOOKS CLICK HERE

CICK TO DOWNLOAD : SSC CGL TIER-1 PDF NOTES

Q.14 Select the most appropriate meaning of the given idiom.
To read between the lines

Ans
✔ 1. To understand more than what the words suggest
✘ 2. To read aloud to public
✘ 3. To read differently
✘ 4. To underline some words

Question ID : **630680205270**
Option 1 ID : **630680795939**
Option 2 ID : **630680795942**
Option 3 ID : **630680795941**
Option 4 ID : **630680795940**
Status : **Answered**
Chosen Option : **1**

Q.15 Select the most appropriate ANTONYM of the underlined word in the following sentence.
In Shakespeare's The Merchant of Venice, Shylock's connivance aimed to <u>jeopardise</u> Antonio's life.

Ans
✘ 1. Risk
✘ 2. Jape
✘ 3. Peril
✔ 4. Safeguard

Question ID : **630680166619**
Option 1 ID : **630680645391**
Option 2 ID : **630680645390**
Option 3 ID : **630680645389**
Option 4 ID : **630680645388**
Status : **Answered**
Chosen Option : **4**

Q.16 Select the INCORRECTLY spelt word from the given sentence .

She recieved an award for her outstanding performance.

Ans
✘ 1. performance
✔ 2. recieved
✘ 3. outstanding
✘ 4. award

Question ID : **630680374417**
Option 1 ID : **6306801458854**
Option 2 ID : **6306801458851**
Option 3 ID : **6306801458853**
Option 4 ID : **6306801458852**
Status : **Answered**
Chosen Option : **2**

FREE! Download SSC CGL, CHSL E-BOOKS CLICK HERE

CICK TO DOWNLOAD : SSC CGL TIER-1 PDF NOTES

Q.17 Select the option that expresses the given sentence in passive voice.
Each candidate was making tall promises.

Ans
✗ 1. Tall promises will be made by each candidate.
✗ 2. Tall promises are made by each candidate.
✓ 3. Tall promises were being made by each candidate.
✗ 4. Tall promises are being made by each candidate.

Question ID : **630680295319**
Option 1 ID : **6306801149002**
Option 2 ID : **6306801149001**
Option 3 ID : **6306801149000**
Option 4 ID : **6306801149003**
Status : **Answered**
Chosen Option : **3**

Q.18 Select the most appropriate ANTONYM of the given word.
Meander

Ans
✗ 1. Ramble
✓ 2. Direct
✗ 3. Confirm
✗ 4. Deputise

Question ID : **630680395432**
Option 1 ID : **6306801541909**
Option 2 ID : **6306801541910**
Option 3 ID : **6306801541911**
Option 4 ID : **6306801541908**
Status : **Answered**
Chosen Option : **3**

Q.19 Select the option that can replace the underlined phrase and make the sentence grammatically correct.
The programme on TV <u>was now shown the blurring faces of the inmates of the rehabilitation centre</u> .

Ans
✗ 1. were now showing the blurring faces of the inmates from the rehabilitation centre
✗ 2. were now showing the blurred faces of the inmates of the rehabilitation centre.
✓ 3. was now showing the blurred faces of the inmates of the rehabilitation centre
✗ 4. was now showing the blurred faces of the inmates upon the rehabilitation centre

Question ID : **630680160248**
Option 1 ID : **630680620366**
Option 2 ID : **630680620367**
Option 3 ID : **630680620364**
Option 4 ID : **630680620365**
Status : **Answered**
Chosen Option : **3**

FREE! Download SSC CGL, CHSL E-BOOKS CLICK HERE

CICK TO DOWNLOAD : SSC CGL TIER-1 PDF NOTES

Q.20 **In the given question, a statement divided into different segments is given. Rearrange all the segments to form a coherent statement.**
O: population is expected to triple in
P: the next 50 years
Q: among the world's poorest countries
R: population shrinkage in that period
S: whereas many rich countries will see

Ans
✗ 1. RSOPQ
✗ 2. POSQR
✗ 3. SPORQ
✓ 4. QOPSR

Question ID : **630680383220**
Option 1 ID : **6306801493788**
Option 2 ID : **6306801493790**
Option 3 ID : **6306801493787**
Option 4 ID : **6306801493789**
Status : **Answered**
Chosen Option : **4**

Comprehension:

In the following passage, some words have been deleted. Read the passage carefully and select the most appropriate option to fill in each blank.
Appearances may not reveal the man. So, you shouldn't make (1) _____ about a man's character based on how he (2) _____ . People smile and smile, yet prove to be (3) _____ . On the other hand, people with rough exteriors prove to be the (4) _____ and most considerate people on earth. They are the people who are beautiful from (5) _____ .

SubQuestion No : 21

Q.21 **Select the most appropriate option to fill in blank number 1.(**

Ans
✗ 1. derivations
✗ 2. ascend
✗ 3. deficient
✓ 4. assumptions

Question ID : **630680156983**
Option 1 ID : **630680607497**
Option 2 ID : **630680607499**
Option 3 ID : **630680607498**
Option 4 ID : **630680607496**
Status : **Answered**
Chosen Option : **4**

FREE! Download SSC CGL, CHSL E-BOOKS CLICK HERE

CICK TO DOWNLOAD : SSC CGL TIER-1 PDF NOTES

Comprehension:

In the following passage, some words have been deleted. Read the passage carefully and select the most appropriate option to fill in each blank.
Appearances may not reveal the man. So, you shouldn't make (1) _____ about a man's character based on how he (2) _____ . People smile and smile, yet prove to be (3) _____ . On the other hand, people with rough exteriors prove to be the (4) _____ and most considerate people on earth. They are the people who are beautiful from (5) _____ .

SubQuestion No : 22

Q.22 Select the most appropriate option to fill in blank number 2.(

Ans

✔ 1. looks

✘ 2. shows

✘ 3. glitters

✘ 4. admits

Question ID : **630680156984**
Option 1 ID : **630680607502**
Option 2 ID : **630680607500**
Option 3 ID : **630680607503**
Option 4 ID : **630680607501**
Status : **Answered**
Chosen Option : **1**

Comprehension:

In the following passage, some words have been deleted. Read the passage carefully and select the most appropriate option to fill in each blank.
Appearances may not reveal the man. So, you shouldn't make (1) _____ about a man's character based on how he (2) _____ . People smile and smile, yet prove to be (3) _____ . On the other hand, people with rough exteriors prove to be the (4) _____ and most considerate people on earth. They are the people who are beautiful from (5) _____ .

SubQuestion No : 23

Q.23 Select the most appropriate option to fill in blank number 3.(

Ans

✔ 1. grumpy

✘ 2. ecstatic

✘ 3. joyful

✘ 4. sparkling

Question ID : **630680156985**
Option 1 ID : **630680607507**
Option 2 ID : **630680607505**
Option 3 ID : **630680607506**
Option 4 ID : **630680607504**
Status : **Answered**
Chosen Option : **2**

FREE! Download SSC CGL, CHSL E-BOOKS CLICK HERE

कर्मचारी चयन आयोग (CGL) परीक्षा अध्ययन सामग्री



- 100% Syllabus Covered
- 9 Books, 1000+ Pages - PRINT COPY
- 3000+ MCQs - PRINT COPY
- 08 Year Solved Papers & Mock Tests (PDF Copy)
- One Year Current Affairs (PDF Copy)

हिन्दी माध्यम

50% OFF

FREE SHIPPING

SSCPORTAL.IN

SSC CGL HINDI

PDF NOTES

100% Syllabus | 1,000+ Pages

https://sscportal.in/study-kit/cgl/tier-1-hindi

CICK TO DOWNLOAD : SSC CGL TIER-1 PDF NOTES

Comprehension:

In the following passage, some words have been deleted. Read the passage carefully and select the most appropriate option to fill in each blank.
Appearances may not reveal the man. So, you shouldn't make (1) _____ about a man's character based on how he (2) _____ . People smile and smile, yet prove to be (3) _____ . On the other hand, people with rough exteriors prove to be the (4) _____ and most considerate people on earth. They are the people who are beautiful from (5) _____ .

SubQuestion No : 24

Q.24 Select the most appropriate option to fill in blank number 4.(

Ans

✔ 1. kindest

✘ 2. strangest

✘ 3. bitterest

✘ 4. gloomiest

Question ID : **630680156986**
Option 1 ID : **630680607510**
Option 2 ID : **630680607508**
Option 3 ID : **630680607509**
Option 4 ID : **630680607511**
Status : **Answered**
Chosen Option : **4**

Comprehension:

In the following passage, some words have been deleted. Read the passage carefully and select the most appropriate option to fill in each blank.
Appearances may not reveal the man. So, you shouldn't make (1) _____ about a man's character based on how he (2) _____ . People smile and smile, yet prove to be (3) _____ . On the other hand, people with rough exteriors prove to be the (4) _____ and most considerate people on earth. They are the people who are beautiful from (5) _____ .

SubQuestion No : 25

Q.25 Select the most appropriate option to fill in blank number 5.(

Ans

✘ 1. style

✔ 2. within

✘ 3. personality

✘ 4. exterior

Question ID : **630680156987**
Option 1 ID : **630680607515**
Option 2 ID : **630680607514**
Option 3 ID : **630680607512**
Option 4 ID : **630680607513**
Status : **Answered**
Chosen Option : **2**

FREE! Download SSC CGL, CHSL E-BOOKS CLICK HERE