CICK TO DOWNLOAD : SSC CGL TIER-1 PDF NOTES

Combined Graduate Level Examination 2024 Tier I

Roll Number	
Candidate Name	
Venue Name	
Exam Date	11/09/2024
Exam Time	4:00 PM - 5:00 PM
Subject	Combined Graduate Level Examination Tier I

Section : **General Intelligence and Reasoning**

Q.1 उस विकल्प का चयन कीजिए जो उन अक्षरों को दर्शाता है, जिन्हें नीचे दिए गए रिक्त स्थानों में बाएँ से दाएँ क्रमिक रूप से रखने पर अक्षर श्रृंखला पूरी हो जाएगी।
R F _ G T R _V G _ R F V _ T _ F V G T

Ans
✗ 1. VFVGR
✗ 2. VTTGR
✓ 3. VFTGR
✗ 4. VFTGG

Question ID : **630680261796**
Option 1 ID : **6306801016841**
Option 2 ID : **6306801016840**
Option 3 ID : **6306801016839**
Option 4 ID : **6306801016842**
Status : **Answered**
Chosen Option : **3**

Q.2 **Select the word pair that best represents a similar relationship to the one expressed in the pair of words given below. (The words must be considered as meaningful English words and must not be related to each other based on the number of letters/number of consonants/vowels in the word)**
Calcium : Osteomalacia

Ans
✗ 1. Lungs : Tuberculosis
✓ 2. Iron : Anaemia
✗ 3. Heart : Cardiovascular
✗ 4. Stomach : Blindness

Question ID : **630680416645**
Option 1 ID : **6306801625344**
Option 2 ID : **6306801625346**
Option 3 ID : **6306801625343**
Option 4 ID : **6306801625345**
Status : **Answered**
Chosen Option : **2**

FREE! Download SSC CGL, CHSL E-BOOKS CLICK HERE

CICK TO DOWNLOAD : SSC CGL TIER-1 PDF NOTES

Q.3 एक निश्चित कूट भाषा में, BRING को '7149182' कूटबद्ध किया जाता है और SMILE को '51291319' कूटबद्ध किया जाता है। उसी कूट भाषा में FORGIVE के लिए कूट क्या होगा?

Ans
- ✗ 1. 5219717166
- ✗ 2. 5229179156
- ✓ 3. 5229718156
- ✗ 4. 5228717156

Question ID : **630680351483**
Option 1 ID : **6306801368030**
Option 2 ID : **6306801368029**
Option 3 ID : **6306801368031**
Option 4 ID : **6306801368032**
Status : **Answered**
Chosen Option : **3**

Q.4 जब दर्पण को MN पर रखा जाता हो तो दी गई आकृति के सही दर्पण प्रतिबिंब का चयन कीजिए।

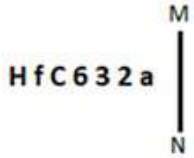

Ans
- ✓ 1. 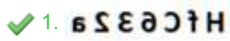
- ✗ 2. 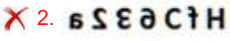
- ✗ 3. 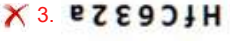
- ✗ 4. 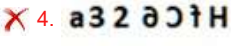

Question ID : **630680325822**
Option 1 ID : **6306801267484**
Option 2 ID : **6306801267482**
Option 3 ID : **6306801267481**
Option 4 ID : **6306801267483**
Status : **Answered**
Chosen Option : **1**

Q.5 निम्न आकृति में त्रिभुजों की संख्या कितनी है?

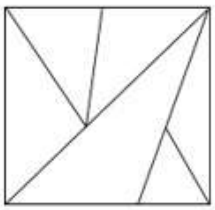

Ans
- ✓ 1. 10
- ✗ 2. 11
- ✗ 3. 8
- ✗ 4. 9

Question ID : **630680285673**
Option 1 ID : **6306801110661**
Option 2 ID : **6306801110660**
Option 3 ID : **6306801110662**
Option 4 ID : **6306801110659**
Status : **Answered**
Chosen Option : **1**

FREE! Download SSC CGL, CHSL E-BOOKS CLICK HERE

CICK TO DOWNLOAD : SSC CGL TIER-1 PDF NOTES

Q.6 उस समुच्चय का चयन कीजिए, जिसमें संख्याएँ उसी प्रकार संबंधित हैं, जिस प्रकार निम्नलिखित समुच्चयों की संख्याएँ संबंधित हैं।
(66, 57, 48)
(94, 85, 76)
(नोट: पूर्ण संख्याओं पर संक्रिया का प्रयोग, संख्याओं को उनके घटक अंकों में विभक्त किए बिना किया जाना चाहिए। उदाहरण के लिए, 13 :- 13 पर संक्रिया जैसे कि जोड़ने/घटाने/गुणा करने आदि को 13 में किया जा सकता है। 13 को 1 और 3 में विभक्त करके और फिर 1 और 3 पर गणितीय संक्रियाओं का प्रयोग करने की अनुमति नहीं है।)

Ans
✗ 1. (85, 77, 64)
✓ 2. (81, 72, 63)
✗ 3. (79, 70, 59)
✗ 4. (98, 90, 83)

Question ID : **630680329200**
Option 1 ID : **6306801280621**
Option 2 ID : **6306801280623**
Option 3 ID : **6306801280622**
Option 4 ID : **6306801280624**
Status : **Answered**
Chosen Option : **2**

FREE! Download SSC CGL, CHSL E-BOOKS CLICK HERE

CICK TO DOWNLOAD : SSC CGL TIER-1 PDF NOTES

Q.7 दिए गए विकल्पों में से उस आकृति का चयन कीजिए जिसे प्रश्न चिह्न (?) के स्थान पर रखने पर शृंखला तार्किक रूप से पूर्ण हो जाएगी।

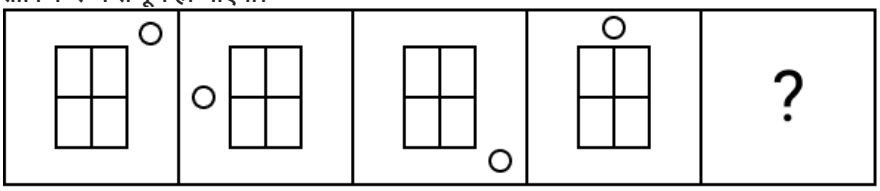

Ans

✔ 1.
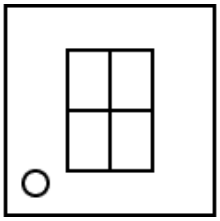

✘ 2.
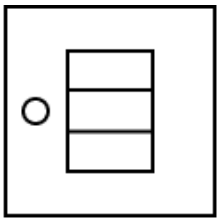

✘ 3.
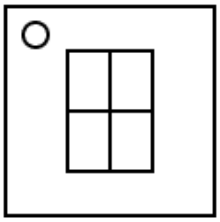

✘ 4.
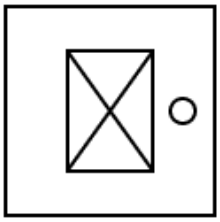

Question ID : **630680467437**
Option 1 ID : **6306801825694**
Option 2 ID : **6306801825697**
Option 3 ID : **6306801825695**
Option 4 ID : **6306801825696**
Status : **Answered**
Chosen Option : **1**

FREE! Download SSC CGL, CHSL E-BOOKS CLICK HERE

CICK TO DOWNLOAD : SSC CGL TIER-1 PDF NOTES

Q.8 एक कागज को नीचे दिखाए अनुसार मोड़ा और काटा जाता है। खोलने पर यह कैसा दिखाई देगा?

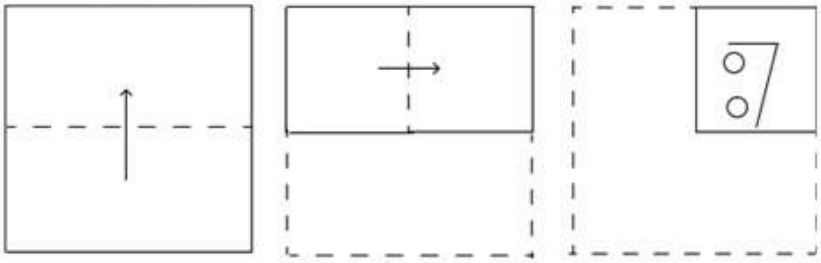

Ans

✗ 1.

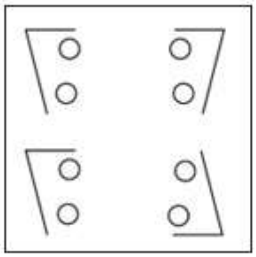

✗ 2.

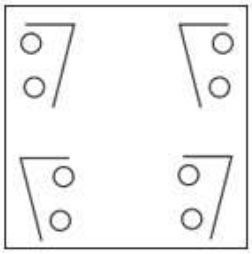

✓ 3.

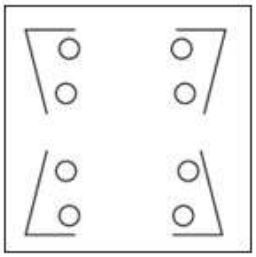

✗ 4.

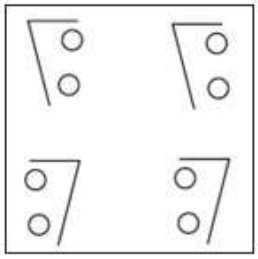

Question ID : **630680294954**
Option 1 ID : **6306801147545**
Option 2 ID : **6306801147547**
Option 3 ID : **6306801147544**
Option 4 ID : **6306801147546**
Status : **Answered**
Chosen Option : **3**

FREE! Download SSC CGL, CHSL E-BOOKS CLICK HERE

कर्मचारी चयन आयोग (CGL) परीक्षा अध्ययन सामग्री



- 100% Syllabus Covered
- 9 Books, 1000+ Pages - PRINT COPY
- 3000+ MCQs - PRINT COPY
- 08 Year Solved Papers & Mock Tests (PDF Copy)
- One Year Current Affairs (PDF Copy)

हिन्दी माध्यम

50% OFF

FREE SHIPPING

SSCPORTAL.IN

SSC CGL HINDI

PDF NOTES

100% Syllabus | 1,000+ Pages

https://sscportal.in/study-kit/cgl/tier-1-hindi

CICK TO DOWNLOAD : SSC CGL TIER-1 PDF NOTES

Q.9 एक निश्चित कूट भाषा में,
R + T का अर्थ है कि 'R, T की बहन है'।
R – T का अर्थ है कि 'R, T का पिता है'।
R * T का अर्थ है कि 'R, T की पत्नी है'।
R ÷ T का अर्थ है कि 'R, T की माता है'।
उपरोक्त के आधार पर, यदि 'M * N – P + Q ÷ R +T' है, तो M का Q से क्या संबंध है?

Ans
1. नानी
2. माता
3. बहन
4. मौसी

Question ID : **630680332509**
Option 1 ID : **6306801293473**
Option 2 ID : **6306801293474**
Option 3 ID : **6306801293475**
Option 4 ID : **6306801293476**
Status : **Answered**
Chosen Option : **2**

Q.10 निम्नलिखित में से कौन सी संख्या दी गई श्रृंखला में प्रश्न चिह्न (?) का स्थान लेगी?
12, 25, 49, ?, 197, 395

Ans
1. 96
2. 121
3. 99
4. 100

Question ID : **630680411884**
Option 1 ID : **6306801606374**
Option 2 ID : **6306801606371**
Option 3 ID : **6306801606372**
Option 4 ID : **6306801606373**
Status : **Answered**
Chosen Option : **3**

Q.11 तीन कथन दिए गए हैं, जिसके बाद तीन निष्कर्ष I, II और III दिए गए हैं। कथनों को सत्य मानते हुए, भले ही वे सामान्य रूप से ज्ञात तथ्यों से भिन्न प्रतीत होते हों, निर्धारित करें कि कौन सा/से निष्कर्ष कथनों का तार्किक रूप से अनुसरण करता/करते है/हैं।
कथन:
कुछ चूहे, मूषक हैं।
कोई मूषक, कृंतक नहीं है।
कुछ चूहे, बिल्ली-शावक (Kittens) है।
निष्कर्ष:
I. कोई कृंतक, बिल्ली-शावक (Kittens) नहीं है।
II. कुछ चूहे, कृंतक हैं।
III. कोई बिल्ली-शावक (Kittens), चूहा नहीं है।

Ans
1. केवल निष्कर्ष III अनुसरण करता है
2. केवल निष्कर्ष I अनुसरण करता है
3. कोई भी निष्कर्ष अनुसरण नहीं करता है
4. केवल निष्कर्ष II अनुसरण करता है

Question ID : **630680416378**
Option 1 ID : **6306801624277**
Option 2 ID : **6306801624275**
Option 3 ID : **6306801624278**
Option 4 ID : **6306801624276**
Status : **Answered**
Chosen Option : **3**

FREE! Download SSC CGL, CHSL E-BOOKS CLICK HERE

CICK TO DOWNLOAD : SSC CGL TIER-1 PDF NOTES

Q.12 उस विकल्प का चयन करें जो पांचवें अक्षर-समूह से उसी प्रकार संबंधित है जिस प्रकार दूसरा अक्षर-समूह पहले अक्षर-समूह से और चौथा अक्षर-समूह तीसरे अक्षर-समूह से संबंधित है।
OUR : NPTVQS : : BIG : ACHJFH : : FOR : ?

Ans
✗ 1. GEPNSQ
✗ 2. GENPRS
✓ 3. EGNPQS
✗ 4. EGNOQR

Question ID : **630680416285**
Option 1 ID : **6306801623906**
Option 2 ID : **6306801623905**
Option 3 ID : **6306801623903**
Option 4 ID : **6306801623904**
Status : **Answered**
Chosen Option : **3**

Q.13 उस विकल्प आकृति का चयन करें जिसमें दी गई आकृति (X) सन्निहित है (घुमाने की अनुमति नहीं है)।

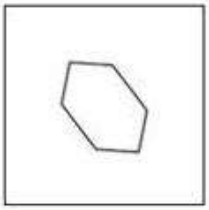

(X)

Ans

✗ 1.
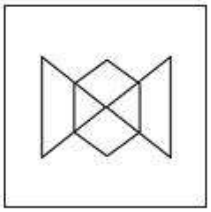

✗ 2.
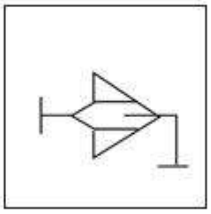

✗ 3.
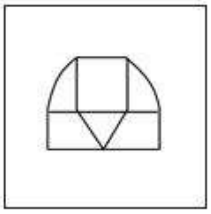

✓ 4.
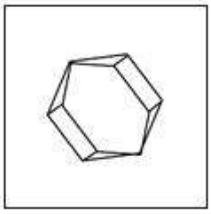

Question ID : **630680296896**
Option 1 ID : **6306801155228**
Option 2 ID : **6306801155230**
Option 3 ID : **6306801155227**
Option 4 ID : **6306801155229**
Status : **Answered**
Chosen Option : **4**

FREE! Download SSC CGL, CHSL E-BOOKS CLICK HERE

CICK TO DOWNLOAD : SSC CGL TIER-1 PDF NOTES

Q.14 यदि '+' और '–' को आपस में बदल दिया जाए और '×' और '÷' को आपस में बदल दिया जाए, तो निम्नलिखित समीकरण में प्रश्न चिह्न (?) के स्थान पर क्या आएगा?

164 – 173 ÷ 110 + 140 × 5 = ?

Ans

✗ 1. 19616

✗ 2. 11916

✗ 3. 11619

✓ 4. 19166

Question ID : **630680411717**
Option 1 ID : **6306801605704**
Option 2 ID : **6306801605705**
Option 3 ID : **6306801605706**
Option 4 ID : **6306801605703**
Status : **Answered**
Chosen Option : **4**

Q.15 विकल्पों में दी गई उस आकृति की पहचान कीजिए, जिसे प्रश्न चिह्न (?) के स्थान पर रखने पर श्रृंखला तार्किक रूप से पूरी हो जाएगी।

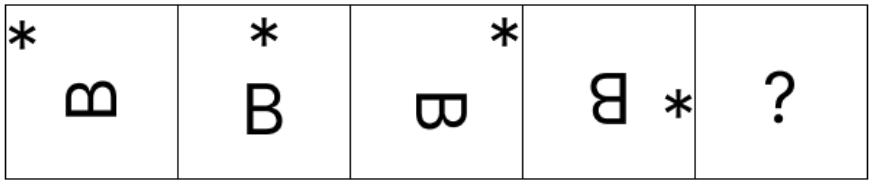

Ans

✗ 1.



✗ 2.



✓ 3.



✗ 4.



Question ID : **630680471507**
Option 1 ID : **6306801841743**
Option 2 ID : **6306801841745**
Option 3 ID : **6306801841742**
Option 4 ID : **6306801841744**
Status : **Answered**
Chosen Option : **3**

FREE! Download SSC CGL, CHSL E-BOOKS CLICK HERE

CICK TO DOWNLOAD : SSC CGL TIER-1 PDF NOTES

Q.16 एक निश्चित कूट भाषा में, 'MAN' को '15316' के रूप में कूटबद्ध किया जाता है और 'SHE' को '21107' के रूप में कूटबद्ध किया जाता है। उसी भाषा में 'OUT' को किस प्रकार कूटबद्ध किया जाएगा?

Ans
1. 172121
2. 152222
3. 172322 ✔
4. 152120

Question ID : **630680172757**
Option 1 ID : **630680669430**
Option 2 ID : **630680669431**
Option 3 ID : **630680669428**
Option 4 ID : **630680669429**
Status : **Answered**
Chosen Option : **3**

Q.17 शब्द 'JUNGLE' के सभी अक्षर वर्णानुक्रम में व्यवस्थित किये जाते हैं। इस प्रकार बने नए अक्षर-समूह में बाएं छोर से दूसरे और दाएं छोर से तीसरे अक्षर के बीच अंग्रेजी वर्णमाला क्रम में कितने अक्षर हैं?

Ans
1. चार ✔
2. दो
3. तीन
4. पाँच

Question ID : **630680222294**
Option 1 ID : **630680863009**
Option 2 ID : **630680863007**
Option 3 ID : **630680863008**
Option 4 ID : **630680863010**
Status : **Answered**
Chosen Option : **1**

Q.18 चार अक्षर समूह दिए गए हैं, जिनमें से तीन किसी न किसी रूप में एक समान हैं। उस असमान विकल्प को चुनिए।
नोट : अक्षर समूह में, असमान विकल्प व्यंजनों/स्वरों की संख्या या उनकी स्थिति पर आधारित नहीं है।

Ans
1. ONM ✔
2. BCD
3. RST
4. JKL

Question ID : **63068062115**
Option 1 ID : **630680239780**
Option 2 ID : **630680239778**
Option 3 ID : **630680239781**
Option 4 ID : **630680239779**
Status : **Answered**
Chosen Option : **1**

FREE! Download SSC CGL, CHSL E-BOOKS CLICK HERE

CICK TO DOWNLOAD : SSC CGL TIER-1 PDF NOTES

Q.19 यदि '+' और '–' को आपस में बदल दिया जाए और '×' और '÷' को आपस में बदल दिया जाए, तो निम्नलिखित समीकरण में प्रश्न-चिन्ह (?) के स्थान पर क्या आएगा?
304 × 19 – 101 + 23 ÷ 5 = ?

Ans
✔ 1. 2
✘ 2. 12
✘ 3. 21
✘ 4. 6

Question ID : **630680336424**
Option 1 ID : **6306801308419**
Option 2 ID : **6306801308417**
Option 3 ID : **6306801308420**
Option 4 ID : **6306801308418**
Status : **Answered**
Chosen Option : **1**

Q.20 दिए गए संख्या युग्मों में से एक को छोड़कर अन्य सभी में समान संक्रिया/संक्रियाओं का अनुसरण किया गया है। वह असंगत संख्या युग्म ज्ञात कीजिए।
(नोट : संख्याओं को उसके संघटक अंकों में खंडित किए बिना संक्रियाएँ पूर्णांकों पर की जानी चाहिए। उदाहरण के लिए 13- 13 पर की जाने वाली संक्रियाएं जैसे जोड़ना/घटाना/गुणा इत्यादि 13 पर ही की जानी चाहिए। 13 को 1 और 3 में खंडित करना और फिर 1 और 3 पर गणितीय संक्रियाएँ करना वर्जित है।)

Ans
✔ 1. 72 : 12
✘ 2. 68 : 11
✘ 3. 44 : 7
✘ 4. 56 : 9

Question ID : **630680412037**
Option 1 ID : **6306801606986**
Option 2 ID : **6306801606985**
Option 3 ID : **6306801606983**
Option 4 ID : **6306801606984**
Status : **Answered**
Chosen Option : **1**

Q.21 उस विकल्प का चयन कीजिए जिसमें संख्याओं के मध्य वही संबंध है जो नीचे दिए गए युग्म की संख्याओं के मध्य है।
(ध्यान दें: संख्याओं को उनके घटक अंकों में विभाजित किए बिना, पूर्ण संख्याओं पर संक्रियाएं की जानी चाहिए। उदाहरण के लिए 13 को लें- 13 पर की जाने वाली संक्रियाएं जैसे जोड़ना/ घटाना/ गुणा करना आदि केवल 13 पर की जा सकती हैं। 13 को 1 और 3 में तोड़ना और फिर 1 और 3 पर गणितीय संक्रियाएं करने की अनुमति नहीं है।)

17 : 253
19 : 271

Ans
✘ 1. 32 : 387
✘ 2. 23 : 207
✔ 3. 21 : 289
✘ 4. 31 : 400

Question ID : **630680326566**
Option 1 ID : **6306801270350**
Option 2 ID : **6306801270351**
Option 3 ID : **6306801270352**
Option 4 ID : **6306801270349**
Status : **Not Answered**
Chosen Option : **--**

FREE! Download SSC CGL, CHSL E-BOOKS CLICK HERE

CICK TO DOWNLOAD : SSC CGL TIER-1 PDF NOTES

Q.22 नीचे संख्याओं के दो समुच्चय दिए गए हैं। संख्याओं के प्रत्येक समुच्चय में, पहली संख्या पर कुछ निश्चित गणितीय संक्रिया करने पर दूसरी संख्या प्राप्त होती है। इसी प्रकार, दूसरी संख्या पर कुछ निश्चित गणितीय संक्रिया करने पर तीसरी संख्या प्राप्त होती है और इसी तरह आगे भी होती है। दिए गए विकल्पों में से कौन-सा विकल्प दिए गए समुच्चयों की तरह संक्रियाओं के समान समुच्चय का अनुसरण करता है?

(नोट: संख्याओं को उनके घटक अंकों में तोड़े बिना, पूर्ण संख्याओं पर संक्रियाएँ की जानी चाहिए। उदाहरण के लिए 13 लीजिए - 13 पर की जाने वाली संक्रियाएँ जैसे कि 13 में जोड़ना/घटाना/गुणा करना आदि केवल 13 पर किया जा सकता है। 13 को 1 और 3 में तोड़ना, तथा 1 और 3 पर गणितीय संक्रिया करने की अनुमति नहीं है।)

14 – 196 – 186 – 172; 15 – 225 – 215 – 200

Ans
1. 8 – 64 – 54 – 40
2. 9 – 81 – 71 – 62
3. 6 – 36 – 26 – 22
4. 3 – 9 – 19 – 14

Question ID : **630680814082**
Option 1 ID : **6306803189547**
Option 2 ID : **6306803189548**
Option 3 ID : **6306803189546**
Option 4 ID : **6306803189545**
Status : **Answered**
Chosen Option : **2**

Q.23 R, P, T, S, M और B फलकों वाले एक ही पासे की दो अलग-अलग स्थितियाँ नीचे दिखाई गई हैं। उस अक्षर का चयन कीजिए जो S अक्षर वाले फलक के विपरीत फलक पर होगा।

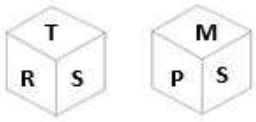

Ans
1. B
2. T
3. R
4. M

Question ID : **630680349070**
Option 1 ID : **6306801358571**
Option 2 ID : **6306801358569**
Option 3 ID : **6306801358570**
Option 4 ID : **6306801358572**
Status : **Answered**
Chosen Option : **1**

FREE! Download SSC CGL, CHSL E-BOOKS CLICK HERE

CICK TO DOWNLOAD : SSC CGL TIER-1 PDF NOTES

Q.24 उस वेन आरेख का चयन करें जो निम्नलिखित वर्गों के बीच के संबंध को सर्वोत्तम रूप से दर्शाता है।
पुरुष, इंजीनियर और पिता

Ans

✗ 1.
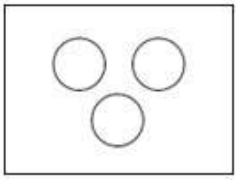

✗ 2.
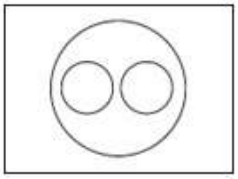

✓ 3.
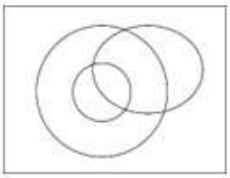

✗ 4.
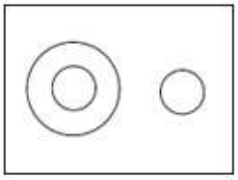

Question ID : **630680392636**
Option 1 ID : **6306801530890**
Option 2 ID : **6306801530891**
Option 3 ID : **6306801530892**
Option 4 ID : **6306801530893**
Status : **Answered**
Chosen Option : **3**

Q.25 अक्षरों के उस संयोजन का चयन कीजिए, जिसे दी गई श्रृंखला के रिक्त स्थानों में क्रमिक रूप से रखे जाने पर श्रृंखला तार्किक रूप से पूरी हो जाएगी।
BYN_J_YNF_X_NFJVY_FJ

Ans

✗ 1. FNJYV

✓ 2. FZJYN

✗ 3. FZYVJ

✗ 4. FJZNY

Question ID : **630680216604**
Option 1 ID : **630680840380**
Option 2 ID : **630680840382**
Option 3 ID : **630680840381**
Option 4 ID : **630680840379**
Status : **Not Answered**
Chosen Option : **--**

Section : **General Awareness**

FREE! Download SSC CGL, CHSL E-BOOKS CLICK HERE

CICK TO DOWNLOAD : SSC CGL TIER-1 PDF NOTES

Q.1 भारत के किस राज्य में जल संग्रहण संरचनाओं के निर्माण के लिए नीरू-मीरू कार्यक्रम शुरू किया गया था?

Ans
✗ 1. राजस्थान
✓ 2. आंध्र प्रदेश
✗ 3. पंजाब
✗ 4. उत्तर प्रदेश

Question ID : **630680327616**
Option 1 ID : **6306801274463**
Option 2 ID : **6306801274461**
Option 3 ID : **6306801274464**
Option 4 ID : **6306801274462**
Status : **Not Answered**
Chosen Option : **--**

Q.2 निम्नलिखित में से कौन-सी परिभाषा माइक्रोफाइनेंस की अवधारणा का सर्वोत्तम वर्णन करती है?

Ans
✗ 1. माइक्रोफाइनेंस का तात्पर्य ग्रामीण क्षेत्रों में रहने वाले व्यक्तियों को बैंकिंग सेवाएँ प्रदान करना है।
✓ 2. माइक्रोफाइनेंस ऐसी बैंकिंग सेवा है, जो उन बेरोजगार या कम आय वाले व्यक्तियों या समूहों को प्रदान की जाती है, जिनके पास अन्य वित्तीय सेवाओं तक कोई पहुँच न हो।
✗ 3. एक माइक्रोफाइनेंस संस्था कंपनी अधिनियम, 1956 के तहत पंजीकृत एक कंपनी है, और सरकार द्वारा जारी किए गए ऋणों एवं अग्रिमों और शेयरों/स्टॉक्स/बांडों/डिबेंचर/प्रतिभूतियों के अधिग्रहण के कारोबार में लगी हुई है।
✗ 4. एक माइक्रोफाइनेंस संस्था सिर्फ डिजिटल और प्राथमिकत: मोबाइल केंद्रित बैंक है।

Question ID : **630680195215**
Option 1 ID : **630680757352**
Option 2 ID : **630680757349**
Option 3 ID : **630680757350**
Option 4 ID : **630680757351**
Status : **Answered**
Chosen Option : **3**

Q.3 एक ध्वनि तरंग को 1.5 km की दूरी तय करने में कितना समय लगेगा, जिसकी आवृत्ति 5 kHz और तरंग दैर्ध्य 6 cm है?

Ans
✗ 1. 25 सेकंड
✓ 2. 5 सेकंड
✗ 3. 2.5 सेकंड
✗ 4. 50 सेकंड

Question ID : **630680517172**
Option 1 ID : **6306802021085**
Option 2 ID : **6306802021086**
Option 3 ID : **6306802021087**
Option 4 ID : **6306802021084**
Status : **Answered**
Chosen Option : **1**

FREE! Download SSC CGL, CHSL E-BOOKS CLICK HERE

CICK TO DOWNLOAD : SSC CGL TIER-1 PDF NOTES

Q.4 सोने (दीनार और चौथाई दीनार) और तांबे (एकल मूल्यवर्ग) में सिक्के जारी करने वाला, वासुदेव प्रथम, एक _____शासक था।

Ans
- ✔ 1. कुषाण
- ✘ 2. वाकाटक
- ✘ 3. शक
- ✘ 4. शुंग

Question ID : **630680412468**
Option 1 ID : **6306801608696**
Option 2 ID : **6306801608697**
Option 3 ID : **6306801608695**
Option 4 ID : **6306801608698**
Status : **Answered**
Chosen Option : **3**

Q.5 अर्नेस्ट रदरफोर्ड ने अल्फा प्रकीर्णन प्रयोगों के लिए लगभग _____ मोटी सोने की पन्नी का इस्तेमाल किया था।

Ans
- ✔ 1. 1000 परमाणु
- ✘ 2. 700 परमाणु
- ✘ 3. 900 परमाणु
- ✘ 4. 500 परमाणु

Question ID : **63068094228**
Option 1 ID : **630680365610**
Option 2 ID : **630680365608**
Option 3 ID : **630680365609**
Option 4 ID : **630680365607**
Status : **Not Answered**
Chosen Option : **--**

Q.6 एकबीजपत्री पत्तियों में संवहन बंडल के समान आकार का कारण क्या है?

Ans
- ✘ 1. अरीय शिरा-विन्यास
- ✔ 2. समानांतर शिरा-विन्यास
- ✘ 3. आयताकार शिरा-विन्यास
- ✘ 4. घनाकार शिरा-विन्यास

Question ID : **630680305640**
Option 1 ID : **6306801188933**
Option 2 ID : **6306801188935**
Option 3 ID : **6306801188934**
Option 4 ID : **6306801188936**
Status : **Not Answered**
Chosen Option : **--**

Q.7 निम्नलिखित में से कौन-सा शब्द क्रिकेट से संबंधित नहीं है?

Ans
- ✔ 1. ड्यूस (Deuce)
- ✘ 2. नो बॉल (No Ball)
- ✘ 3. विकेट (Wicket)
- ✘ 4. वाइड बॉल (Wide Ball)

Question ID : **630680510781**
Option 1 ID : **6306801996257**
Option 2 ID : **6306801996254**
Option 3 ID : **6306801996256**
Option 4 ID : **6306801996255**
Status : **Answered**
Chosen Option : **1**

FREE! Download SSC CGL, CHSL E-BOOKS CLICK HERE

CICK TO DOWNLOAD : SSC CGL TIER-1 PDF NOTES

Q.8 'पौष मेला' निम्नलिखित में से किस भारतीय राज्य में मनाया जाने वाला एक अनूठा त्योहार है?

Ans
- ✗ 1. उत्तर प्रदेश
- ✗ 2. मध्य प्रदेश
- ✗ 3. हिमाचल प्रदेश
- ✓ 4. पश्चिम बंगाल

Question ID : **630680163295**
Option 1 ID : **630680632385**
Option 2 ID : **630680632386**
Option 3 ID : **630680632387**
Option 4 ID : **630680632384**
Status : **Not Answered**
Chosen Option : **--**

Q.9 जवाहरलाल नेहरू मणिपुर नृत्य अकादमी की स्थापना कब की गई थी?

Ans
- ✗ 1. 1951 में
- ✓ 2. 1954 में
- ✗ 3. 1953 में
- ✗ 4. 1952 में

Question ID : **630680157849**
Option 1 ID : **630680610927**
Option 2 ID : **630680610926**
Option 3 ID : **630680610925**
Option 4 ID : **630680610924**
Status : **Not Answered**
Chosen Option : **--**

Q.10 वर्ष 2022 में, भारतीय रेलवे द्वारा शुरू की गई 'वन स्टेशन वन प्रोडक्ट' योजना के लिए निम्नलिखित में से किस रेलवे स्टेशन का चयन किया गया है, जिसकी पहचान चयनित उत्पाद के रूप में काँचीपुरम साड़ियों से होती है?

Ans
- ✓ 1. चेन्नई सेंट्रल
- ✗ 2. हावड़ा
- ✗ 3. विशाखापत्तनम
- ✗ 4. पटना जं.

Question ID : **630680413083**
Option 1 ID : **6306801611157**
Option 2 ID : **6306801611158**
Option 3 ID : **6306801611156**
Option 4 ID : **6306801611155**
Status : **Answered**
Chosen Option : **3**

Q.11 निम्नलिखित में से किस संविधान ने भारत में कानून बनाने की प्रक्रिया को प्रेरित किया?

Ans
- ✗ 1. अमेरिका के संविधान
- ✗ 2. कनाडा के संविधान
- ✗ 3. आयरलैंड के संविधान
- ✓ 4. ब्रिटेन के संविधान

Question ID : **630680408209**
Option 1 ID : **6306801591734**
Option 2 ID : **6306801591732**
Option 3 ID : **6306801591731**
Option 4 ID : **6306801591733**
Status : **Answered**
Chosen Option : **4**

FREE! Download SSC CGL, CHSL E-BOOKS CLICK HERE

CICK TO DOWNLOAD : SSC CGL TIER-1 PDF NOTES

Q.12 निम्नलिखित में से कौन-सी योजना उच्च शिक्षा संस्थानों में विद्यार्थियों की गतिशीलता को सक्षम बनाती है?

Ans
✔ 1. एकेडमिक बैंक ऑफ क्रेडिट्स
✘ 2. स्ट्रक्चर्ड ऐसेसमेंट फॉर एनालाइजिंग लर्निंग लेवल्स (SAFAL)
✘ 3. पीएम उम्मीद स्कीम
✘ 4. नेशनल एजुकेशनल टेक्नोलॉजी फोरम

Question ID : **63068099700**
Option 1 ID : **630680387497**
Option 2 ID : **630680387498**
Option 3 ID : **630680387496**
Option 4 ID : **630680387499**
Status : **Not Answered**
Chosen Option : **--**

Q.13 1909 के मॉर्ले-मिंटो सुधारों के संदर्भ में निम्नलिखित कथनों पर विचार करें।
a) इन्हें भारतीय परिषद अधिनियम, 1909 भी कहा जाता है।
b) उन्होंने विधान परिषदों की ताकत में वृद्धि की।
c) मुसलमानों को पृथक निर्वाचन क्षेत्र का अधिकार दिया गया।
उपर्युक्त कथनों में से कौन-सा/कौन-से कथन सही है/हैं?

Ans
✔ 1. a, b, c
✘ 2. b, c
✘ 3. c, a
✘ 4. a, b

Question ID : **630680412332**
Option 1 ID : **6306801608154**
Option 2 ID : **6306801608153**
Option 3 ID : **6306801608152**
Option 4 ID : **6306801608151**
Status : **Answered**
Chosen Option : **1**

Q.14 एलन के नियम से हमारा क्या तात्पर्य है?

Ans
✔ 1. ठंडी जलवायु वाले स्तनधारियों के कान और अंग (भुजा/टांग) आमतौर पर छोटे होते हैं ताकि ऊष्मा की हानि न्यूनतम हो।
✘ 2. रेगिस्तानी छिपकलियों में शारीरिक क्षमता की कमी होती है क्योंकि स्तनधारियों को अपने आवास के उच्च तापमान से निपटना पड़ता है।
✘ 3. शरीर लाल रक्त कोशिकाओं के उत्पादन को बढ़ाकर, हीमोग्लोबिन की बाध्यकारी सादृश्यता को कम करके और सांस लेने की दर को बढ़ाकर कम ऑक्सीजन की उपलब्धता की भरपाई करता है।
✘ 4. कुछ पौधों में पत्ते नहीं होते हैं - वे कांटों में परिवर्तित हो जाते हैं - और प्रकाश संश्लेषक कार्य चपटे तनों द्वारा होता है।

Question ID : **63068049646**
Option 1 ID : **630680191015**
Option 2 ID : **630680191016**
Option 3 ID : **630680191014**
Option 4 ID : **630680191017**
Status : **Not Answered**
Chosen Option : **--**

FREE! Download SSC CGL, CHSL E-BOOKS CLICK HERE

CICK TO DOWNLOAD : SSC CGL TIER-1 PDF NOTES

Q.15 राजस्थान के निम्नलिखित में से किस जिले में 'बार्चन' (Barchans) पाए जाते हैं?

Ans
- ✗ 1. उदयपुर
- ✗ 2. भीलवाड़ा
- ✗ 3. अलवर
- ✓ 4. जैसलमेर

Question ID : **630680328127**
Option 1 ID : **6306801276478**
Option 2 ID : **6306801276479**
Option 3 ID : **6306801276480**
Option 4 ID : **6306801276477**
Status : **Not Answered**
Chosen Option : **--**

Q.16 भारत के संविधान का कौन-सा अनुच्छेद किसी राज्य सरकार के कामकाज के संचालन से संबंधित है?

Ans
- ✓ 1. अनुच्छेद 166
- ✗ 2. अनुच्छेद 164
- ✗ 3. अनुच्छेद 177
- ✗ 4. अनुच्छेद 167

Question ID : **630680305554**
Option 1 ID : **6306801188590**
Option 2 ID : **6306801188589**
Option 3 ID : **6306801188592**
Option 4 ID : **6306801188591**
Status : **Answered**
Chosen Option : **3**

Q.17 मैदान में कबड्डी टीम के प्रत्येक पाले में कितने खिलाड़ी होते हैं?

Ans
- ✓ 1. 7
- ✗ 2. 10
- ✗ 3. 9
- ✗ 4. 8

Question ID : **630680510812**
Option 1 ID : **6306801996379**
Option 2 ID : **6306801996381**
Option 3 ID : **6306801996380**
Option 4 ID : **6306801996378**
Status : **Answered**
Chosen Option : **1**

Q.18 मई 2022 में, तत्कालीन राष्ट्रपति राम नाथ कोविंद ने _____ को दिल्ली का उपराज्यपाल नियुक्त किया।

Ans
- ✓ 1. विनय कुमार सक्सेना
- ✗ 2. अनिल बैजल
- ✗ 3. विजय कपूर
- ✗ 4. किरण बेदी

Question ID : **630680195357**
Option 1 ID : **630680757897**
Option 2 ID : **630680757898**
Option 3 ID : **630680757899**
Option 4 ID : **630680757900**
Status : **Not Answered**
Chosen Option : **--**

FREE! Download SSC CGL, CHSL E-BOOKS CLICK HERE

CICK TO DOWNLOAD : SSC CGL TIER-1 PDF NOTES

Q.19 निम्नलिखित में से किस विदेशी यात्री के अनुसार दिल्ली के लोग सुल्तान को अपशब्दों भरे पत्र लिखते थे, जिसके कारण सुल्तान ने उन्हें दंडित करने के लिए राजधानी को स्थानांतरित करने का निर्णय लिया?

Ans
- ✗ 1. हसन निज़ामी
- ✓ 2. इब्न बतूता
- ✗ 3. अल बिरूनी
- ✗ 4. इसामी

Question ID : **630680412432**
Option 1 ID : **6306801608554**
Option 2 ID : **6306801608551**
Option 3 ID : **6306801608553**
Option 4 ID : **6306801608552**
Status : **Not Answered**
Chosen Option : **--**

Q.20 फरवरी 1922 में, संयुक्त प्रांत में निम्नलिखित में से कौन-सी घटना घटी?

Ans
- ✗ 1. भारत छोड़ो
- ✗ 2. काकोरी कांड
- ✓ 3. चौरी चौरा
- ✗ 4. खिलाफत आंदोलन

Question ID : **630680511496**
Option 1 ID : **6306801999108**
Option 2 ID : **6306801999107**
Option 3 ID : **6306801999109**
Option 4 ID : **6306801999106**
Status : **Answered**
Chosen Option : **3**

Q.21 लता मंगेशकर को वर्ष _____ में भारत रत्न से सम्मानित किया गया था।

Ans
- ✓ 1. 2001
- ✗ 2. 2003
- ✗ 3. 2002
- ✗ 4. 2004

Question ID : **630680512247**
Option 1 ID : **6306802001958**
Option 2 ID : **6306802001960**
Option 3 ID : **6306802001959**
Option 4 ID : **6306802001961**
Status : **Answered**
Chosen Option : **2**

Q.22 हिंदुस्तानी शास्त्रीय परंपरा में भारतीय बाँसुरीवादक हरिप्रसाद चौरसिया को 2000 में निम्नलिखित में से किस पुरस्कार से सम्मानित किया गया था?

Ans
- ✓ 1. पद्म विभूषण
- ✗ 2. पद्म श्री
- ✗ 3. पद्म भूषण
- ✗ 4. भारत रत्न

Question ID : **630680415813**
Option 1 ID : **6306801622020**
Option 2 ID : **6306801622022**
Option 3 ID : **6306801622021**
Option 4 ID : **6306801622019**
Status : **Answered**
Chosen Option : **1**

FREE! Download SSC CGL, CHSL E-BOOKS CLICK HERE

SSC CGL (Tier-1) STUDY NOTES

- 100% CGL Exam Syllabus Covered
- 12 Books, 1300+ Pages
- 5600+ MCQs
- Previous Year Papers & Mocks
- 1 Year Current Affairs
- Support & Guidance

FREE SHIPPING

50% OFF

100% SAFE

SSCPORTAL.IN

SSC CGL

PDF NOTES

100% Syllabus | 1300+ Pages

50% OFF

CLICK HERE

CICK TO DOWNLOAD : SSC CGL TIER-1 PDF NOTES

Q.23 महालनोबिस मॉडल किस पंचवर्षीय योजना का आधार था?

Ans
- ✗ 1. चौथी पंचवर्षीय योजना
- ✗ 2. छठी पंचवर्षीय योजना
- ✗ 3. पहली पंचवर्षीय योजना
- ✓ 4. दूसरी पंचवर्षीय योजना

Question ID : **630680411052**
Option 1 ID : **6306801602962**
Option 2 ID : **6306801602963**
Option 3 ID : **6306801602960**
Option 4 ID : **6306801602961**
Status : **Answered**
Chosen Option : **4**

Q.24 भारत में निम्न में से किस प्रकार की बेरोजगारी तब पाई जाती है जब लोग एक वर्ष की एक निश्चित अवधि के लिए पर्वतीय क्षेत्रों में पर्यटन रिसॉर्ट्स और विभिन्न पर्यटन संबंधी गतिविधियों में कार्यरत होते हैं, लेकिन ऑफ-सीजन में बेरोजगार होते हैं?

Ans
- ✗ 1. प्रच्छन्न बेरोजगारी
- ✗ 2. अल्प रोजगार
- ✗ 3. चक्रीय बेरोजगारी
- ✓ 4. मौसमी बेरोजगारी

Question ID : **630680134790**
Option 1 ID : **630680521978**
Option 2 ID : **630680521981**
Option 3 ID : **630680521980**
Option 4 ID : **630680521979**
Status : **Answered**
Chosen Option : **3**

Q.25 18वीं शताब्दी में ऑक्सीजन के साथ रासायनिक अभिक्रिया के रूप में दहन के सिद्धांत को किसने विकसित किया, जिसमें फ्लॉजिस्टन सिद्धांत शामिल नहीं था?

Ans
- ✓ 1. एंटोनी लवॉज़िएर
- ✗ 2. रॉबर्ट बॉयल
- ✗ 3. फ्रेडरिक वोहलर
- ✗ 4. जोहान बीचर

Question ID : **63068085792**
Option 1 ID : **630680332629**
Option 2 ID : **630680332630**
Option 3 ID : **630680332631**
Option 4 ID : **630680332628**
Status : **Answered**
Chosen Option : **3**

Section : **Quantitative Aptitude**

FREE! Download SSC CGL, CHSL E-BOOKS CLICK HERE

CICK TO DOWNLOAD : SSC CGL TIER-1 PDF NOTES

Q.1 सिद्धि अपने स्कूटर को ₹31902 में बेचकर, विक्रय मूल्य के $\frac{1}{6}$ भाग के बराबर लाभ अर्जित करती है। उसका लाभ प्रतिशत ज्ञात कीजिए।

Ans
✗ 1. 5%
✗ 2. 30%
✗ 3. 25%
✓ 4. 20%

Question ID : **630680922776**
Option 1 ID : **6306803615953**
Option 2 ID : **6306803615951**
Option 3 ID : **6306803615952**
Option 4 ID : **6306803615950**
Status : **Answered**
Chosen Option : **4**

Q.2 P और Q दो ऐसे वृत्तों के केंद्र हैं जिनकी त्रिज्या क्रमशः 7 cm और 3 cm हैं। यदि वृत्तों की सीधी उभयनिष्ठ अनुस्पर्श रेखा विस्तारित PQ से A पर मिलती हैं, तो A, PQ को _____ विभाजित करता है।

Ans
✓ 1. बाह्य रूप से 7 : 3 के अनुपात में
✗ 2. आंतरिक रूप से 7 : 3 के अनुपात में
✗ 3. आंतरिक रूप से 3 : 7 के अनुपात में
✗ 4. बाह्य रूप से 3 : 7 के अनुपात में

Question ID : **630680194643**
Option 1 ID : **630680755100**
Option 2 ID : **630680755099**
Option 3 ID : **630680755098**
Option 4 ID : **630680755097**
Status : **Answered**
Chosen Option : **3**

Q.3 * को उस लघुतम अंक से प्रतिस्थापित कीजिए, जिससे 723*56* संख्या 6 से विभाज्य हो जाए।

Ans
✗ 1. 4
✓ 2. 2
✗ 3. 1
✗ 4. 3

Question ID : **630680121038**
Option 1 ID : **630680469121**
Option 2 ID : **630680469118**
Option 3 ID : **630680469119**
Option 4 ID : **630680469120**
Status : **Answered**
Chosen Option : **2**

FREE! Download SSC CGL, CHSL E-BOOKS CLICK HERE

CICK TO DOWNLOAD : SSC CGL TIER-1 PDF NOTES

Q.4 सोहन ने 11% वार्षिक साधारण ब्याज की दर से ₹1,41,545 की राशि उधार ली। प्रथम वर्ष की समाप्ति पर, वह उधार ली गई मूल राशि की वापसी के लिए ₹25,490 चुकाता है। यदि सोहन दूसरे वर्ष की समाप्ति पर सभी लंबित बकाया राशि का भुगतान करता है, जिसमें प्रथम वर्ष के दौरान अर्जित ब्याज भुगतान भी शामिल है, तो वह दूसरे वर्ष की समाप्ति पर कितना भुगतान (₹ में) करेगा?

Ans
- ✗ 1. 1,36,453
- ✓ 2. 1,44,391
- ✗ 3. 1,41,222
- ✗ 4. 1,37,407

Question ID : **630680809864**
Option 1 ID : **6306803173037**
Option 2 ID : **6306803173035**
Option 3 ID : **6306803173038**
Option 4 ID : **6306803173036**
Status : **Not Answered**
Chosen Option : **--**

Q.5 एक ΔLMN में, ∠L = 118° और LM = LN है। ∠N ज्ञात कीजिए।

Ans
- ✓ 1. 31°
- ✗ 2. 62°
- ✗ 3. 42°
- ✗ 4. 65°

Question ID : **630680285627**
Option 1 ID : **6306801110475**
Option 2 ID : **6306801110477**
Option 3 ID : **6306801110476**
Option 4 ID : **6306801110478**
Status : **Answered**
Chosen Option : **1**

Q.6 एक महिला अपनी आय का $\frac{2}{3}$ व्यय करती है। यदि उसकी आय में 18% की वृद्धि होती है और व्यय में 24% की वृद्धि होती है, तो उसकी बचत में कितने प्रतिशत की वृद्धि होगी?

Ans
- ✗ 1. 4%
- ✗ 2. 5%
- ✗ 3. 3%
- ✓ 4. 6%

Question ID : **630680428078**
Option 1 ID : **6306801670358**
Option 2 ID : **6306801670356**
Option 3 ID : **6306801670357**
Option 4 ID : **6306801670359**
Status : **Answered**
Chosen Option : **4**

FREE! Download SSC CGL, CHSL E-BOOKS CLICK HERE

CICK TO DOWNLOAD : SSC CGL TIER-1 PDF NOTES

Q.7

ΔABC में, यदि $\frac{1}{2}\angle A + \angle B + \angle C = 120^\circ$ है, तो $\frac{1}{4}\angle A$ का मान ज्ञात कीजिए।

Ans

✔ 1. 30°

✘ 2. 40°

✘ 3. 20°

✘ 4. 60°

Question ID : **6306801048018**
Option 1 ID : **6306804114118**
Option 2 ID : **6306804114120**
Option 3 ID : **6306804114119**
Option 4 ID : **6306804114121**
Status : **Answered**
Chosen Option : **1**

Q.8

यदि $p\sin A - \cos A = 1$ है, तो $p^2 - (1+p^2)\cos A$ का मान ज्ञात करें।

Ans

✘ 1. 0

✘ 2. 2

✘ 3. -1

✔ 4. 1

Question ID : **630680361829**
Option 1 ID : **6306801409081**
Option 2 ID : **6306801409083**
Option 3 ID : **6306801409082**
Option 4 ID : **6306801409084**
Status : **Not Answered**
Chosen Option : **--**

FREE! Download SSC CGL, CHSL E-BOOKS CLICK HERE

CICK TO DOWNLOAD : SSC CGL TIER-1 PDF NOTES

Q.9 5 वर्षों में 5 कंपनियों के माल के कुल आयात (लाख में) के लिए दी गई तालिका पर विचार करें और निम्नलिखित प्रश्न का उत्तर दें।

कंपनियाँ / वर्ष	R	S	T	U	V
2012	60	40	15	45	25
2013	30	60	70	15	90
2014	51	25	55	100	110
2015	45	51	20	70	65
2016	24	35	60	55	125

यदि वर्ष 2013 में सभी कंपनियों का कुल निर्यात ₹300 लाख है, तो वर्ष 2013 में सभी कंपनियों का कुल लाभ/हानि ज्ञात कीजिए।
(मान लें: लाभ = निर्यात - आयात)

Ans
✗ 1. ₹27 लाख की हानि
✓ 2. ₹35 लाख का लाभ
✗ 3. ₹30 लाख का लाभ
✗ 4. ₹18 लाख की हानि

Question ID : **630680432341**
Option 1 ID : **6306801687373**
Option 2 ID : **6306801687371**
Option 3 ID : **6306801687372**
Option 4 ID : **6306801687374**
Status : **Answered**
Chosen Option : **2**

Q.10 सरल कीजिए $4\frac{4}{5} \times \frac{3}{8} + \left(3\frac{1}{2} + \frac{2}{3}\right) \times \frac{4}{5}$

Ans
✗ 1. $\frac{15}{77}$
✗ 2. $\frac{10}{3}$
✗ 3. $\frac{3}{10}$
✓ 4. $\frac{77}{15}$

Question ID : **630680427964**
Option 1 ID : **6306801669901**
Option 2 ID : **6306801669903**
Option 3 ID : **6306801669900**
Option 4 ID : **6306801669902**
Status : **Answered**
Chosen Option : **4**

FREE! Download SSC CGL, CHSL E-BOOKS CLICK HERE

CICK TO DOWNLOAD : SSC CGL TIER-1 PDF NOTES

Q.11 एक नाव धारा के विपरीत दिशा में 54 km की दूरी 6 घंटे में तय कर सकती है। यदि धारा की चाल 4.8 km/h है, तो नाव को धारा की दिशा में 279 km की दूरी तय करने में कितना समय (घंटे में) लगेगा?

Ans
- ✗ 1. 18
- ✓ 2. 15
- ✗ 3. 16
- ✗ 4. 20

Question ID : **630680428413**
Option 1 ID : **6306801671697**
Option 2 ID : **6306801671699**
Option 3 ID : **6306801671698**
Option 4 ID : **6306801671696**
Status : **Answered**
Chosen Option : **2**

Q.12 यदि $x+\frac{1}{9x}=3$ हो, तो $9x^2+\frac{1}{9x^2}$ का मान ज्ञात कीजिए।

Ans
- ✗ 1. 81
- ✗ 2. 87
- ✓ 3. 79
- ✗ 4. 77

Question ID : **630680413529**
Option 1 ID : **6306801612941**
Option 2 ID : **6306801612943**
Option 3 ID : **6306801612942**
Option 4 ID : **6306801612940**
Status : **Answered**
Chosen Option : **3**

Q.13 △ABC में, दो माध्यिकाएँ AD और BE, बिंदु G पर समकोण पर प्रतिच्छेदित करती हैं। यदि AD = 12 cm और BE = 9 cm हैं, तो AB की लंबाई कितनी है?

Ans
- ✗ 1. 16 cm
- ✓ 2. 10 cm
- ✗ 3. 12 cm
- ✗ 4. 14 cm

Question ID : **630680395276**
Option 1 ID : **6306801541312**
Option 2 ID : **6306801541315**
Option 3 ID : **6306801541314**
Option 4 ID : **6306801541313**
Status : **Not Answered**
Chosen Option : **--**

FREE! Download SSC CGL, CHSL E-BOOKS CLICK HERE

CICK TO DOWNLOAD : SSC CGL TIER-1 PDF NOTES

Q.14 1.21 और 0.09 के माध्यानुपाती तथा 0.16 और 0.36 के माध्यानुपाती का अनुपात क्या है?

Ans
1. 13 : 12
2. 11 : 8
3. 11 : 13
4. 13 : 8

Question ID : **630680428537**
Option 1 ID : **6306801672193**
Option 2 ID : **6306801672192**
Option 3 ID : **6306801672194**
Option 4 ID : **6306801672195**
Status : **Answered**
Chosen Option : **2**

Q.15 यदि राम एक पंखा खरीदता है, तो उसे 8% की छूट मिलती है, हालाँकि, यदि वह तीन पंखे खरीदता है, तो उसे पहले पर 6%, दूसरे पर 10% और तीसरे पर 12% की छूट मिलती है। यदि राम द्वारा तीन पंखों के लिए भुगतान की गई राशि ₹6,800 है, तो प्रत्येक पंखे का अंकित मूल्य क्या होगा?

Ans
1. ₹2,400
2. ₹2,500
3. ₹2,550
4. ₹2,450

Question ID : **630680395544**
Option 1 ID : **6306801542340**
Option 2 ID : **6306801542342**
Option 3 ID : **6306801542343**
Option 4 ID : **6306801542341**
Status : **Answered**
Chosen Option : **2**

Q.16 30 छात्रों वाली एक कक्षा के सभी छात्रों ने एक टेस्ट दिया। 12 छात्रों का औसत स्कोर 62 है और बाकी छात्रों का औसत स्कोर 74 है। कक्षा का औसत स्कोर ज्ञात करें।

Ans
1. 69.2
2. 67.2
3. 70.2
4. 68.2

Question ID : **630680566262**
Option 1 ID : **6306802214036**
Option 2 ID : **6306802214039**
Option 3 ID : **6306802214038**
Option 4 ID : **6306802214037**
Status : **Answered**
Chosen Option : **1**

FREE! Download SSC CGL, CHSL E-BOOKS CLICK HERE

CICK TO DOWNLOAD : SSC CGL TIER-1 PDF NOTES

Q.17 sin 74° + tan 74° को 0° और 45° के बीच के कोणों के त्रिकोणमितीय अनुपात के रूप में व्यक्त करें।

Ans

✔ 1. $\cos 16° + \cot 16°$

✘ 2. $\text{cosec } 16° + \sec 16°$

✘ 3. $\text{cosec } 16° + \cot 16°$

✘ 4. $\sec 16° + \cot 16°$

Question ID : **630680518883**
Option 1 ID : **6306802028007**
Option 2 ID : **6306802028006**
Option 3 ID : **6306802028005**
Option 4 ID : **6306802028004**
Status : **Answered**
Chosen Option : **1**

Q.18 उस त्रिभुज PQR पर विचार कीजिए, जो R पर समकोण है, जिसमें PQ = 29 इकाई है, QR = 21 इकाई और $\angle PQR = \theta$ है। $\cos^2\theta - \sin^2\theta$ का मान ज्ञात कीजिए।

Ans

✘ 1. 1

✘ 2. $\frac{20}{841}$

✔ 3. $\frac{41}{841}$

✘ 4. $\frac{21}{841}$

Question ID : **6306801048021**
Option 1 ID : **6306804114130**
Option 2 ID : **6306804114133**
Option 3 ID : **6306804114131**
Option 4 ID : **6306804114132**
Status : **Answered**
Chosen Option : **3**

Q.19 नमन, किसी दुकान से ₹720 में कुछ सेब खरीदता है। वह कीमत पर मोल-भाव करता है और दुकानदार कीमत में प्रति सेब ₹2 की कमी कर देता है। इसके कारण नमन, पहले खरीदे गए सेब से चार अधिक सेब खरीद लेता है। उसने पहले कितने सेब खरीदे थे?

Ans

✘ 1. 40

✘ 2. 44

✔ 3. 36

✘ 4. 48

Question ID : **630680382128**
Option 1 ID : **6306801489427**
Option 2 ID : **6306801489429**
Option 3 ID : **6306801489428**
Option 4 ID : **6306801489430**
Status : **Answered**
Chosen Option : **1**

FREE! Download SSC CGL, CHSL E-BOOKS CLICK HERE

CICK TO DOWNLOAD : SSC CGL TIER-1 PDF NOTES

Q.20 निम्नलिखित व्यंजक सरल करें।

$$\left(\frac{3}{a}+3a\right)\left(\frac{9}{a^2}-9+9a^2\right) \text{ यदि } a=1$$

Ans
1. 81
2. 63
3. 27
4. 54 ✔

Question ID : **630680413536**
Option 1 ID : **6306801612970**
Option 2 ID : **6306801612971**
Option 3 ID : **6306801612969**
Option 4 ID : **6306801612968**
Status : **Answered**
Chosen Option : **4**

Q.21 50 cm, 150 cm, 175 cm विमाओं वाले एक घनाभ को एक जैसे कितने विशालतम घनों में विभाजित किया जा सकता है?

Ans
1. 84 ✔
2. 85
3. 75
4. 90

Question ID : **630680421533**
Option 1 ID : **6306801644595**
Option 2 ID : **6306801644598**
Option 3 ID : **6306801644597**
Option 4 ID : **6306801644596**
Status : **Not Answered**
Chosen Option : **--**

Q.22 दी गई तालिका 4 वर्षों में पांच फार्मों द्वारा उत्पादित केलों की संख्या को दर्शाती है।

वर्ष	फार्म				
	L	M	N	O	P
2020	17,500	14,180	16,300	17,405	15,805
2021	11,200	13,900	14,600	15,304	16,207
2022	12,300	17,652	14,800	15,150	16,404
2023	14,650	15,558	17,465	14,185	15,450

वर्ष 2022 में फार्म M द्वारा उत्पादित दर्जनों केलों और फार्म P द्वारा उत्पादित दर्जनों केलों का संबंधित अनुपात (respective ratio) क्या है?

Ans
1. 1230 : 1331
2. 1367 : 1471
3. 1471 : 1367 ✔
4. 1331 : 1230

Question ID : **630680523765**
Option 1 ID : **6306802047212**
Option 2 ID : **6306802047211**
Option 3 ID : **6306802047213**
Option 4 ID : **6306802047214**
Status : **Answered**
Chosen Option : **3**

FREE! Download SSC CGL, CHSL E-BOOKS CLICK HERE

CICK TO DOWNLOAD : SSC CGL TIER-1 PDF NOTES

Q.23 एक टंकी को विभिन्न एकसमान प्रवाह दर वाले तीन पाइपों द्वारा भरा जाता है। जब पहले दो पाइप एक साथ कार्य करते हैं, तो वे टंकी को उतनी ही अवधि में भरते हैं जितनी अवधि में अकेले तीसरा पाइप इसे भरता है। दूसरा पाइप, पहले पाइप की तुलना में टंकी को 5 घंटे जल्दी से भर सकता है, किंतु तीसरे पाइप की तुलना में 4 घंटे धीमे भर सकता है। पहले पाइप द्वारा टंकी को भरने में कितना समय (घंटे में) लगेगा?

Ans
1. 12
2. 9
3. 18
4. 15 ✔

Question ID : **630680381398**
Option 1 ID : **6306801486532**
Option 2 ID : **6306801486531**
Option 3 ID : **6306801486534**
Option 4 ID : **6306801486533**
Status : **Not Answered**
Chosen Option : **--**

Q.24 सलोनी की मासिक आय का, विभिन्न मदों पर व्यय का प्रतिशत वितरण निम्नलिखित तालिका में दिया गया है। तालिका का ध्यानपूर्वक अध्ययन कीजिए और निम्नलिखित प्रश्न का उत्तर दीजिए।

मद	किराया	भोजन	शिक्षा	बिल	विविध
प्रतिशत वितरण	30%	20%	25%	20%	5%

यदि सलोनी की मासिक आय ₹75,000 है, तो वह किराए और शिक्षा पर कितना धन (₹ में) व्यय करती है?

Ans
1. 40,150
2. 41,250 ✔
3. 42,150
4. 43,250

Question ID : **630680428189**
Option 1 ID : **6306801670800**
Option 2 ID : **6306801670801**
Option 3 ID : **6306801670802**
Option 4 ID : **6306801670803**
Status : **Answered**
Chosen Option : **2**

FREE! Download SSC CGL, CHSL E-BOOKS CLICK HERE

CICK TO DOWNLOAD : SSC CGL TIER-1 PDF NOTES

Q.25 यहाँ दी गई तालिका दो एथलीटों X और Y द्वारा एक ही दिशा में तय की गई दूरी (km में) दर्शाती है।

Hour	Distance Travelled (in Km)	
	X	Y
1st	25	30
2nd	35	45
3rd	25	40
4th	20	30
5th	25	20
6th	20	15

Distance Travelled (in km) – तय की गई दूरी (Km में); Hour: घंटा,
पहले पाँच घंटे के दौरान Y की औसत चाल (km/घंटा में) कितनी है?

Ans
✗ 1. 34
✓ 2. 33
✗ 3. 31
✗ 4. 32

Question ID : **630680382680**
Option 1 ID : **6306801491638**
Option 2 ID : **6306801491637**
Option 3 ID : **6306801491635**
Option 4 ID : **6306801491636**
Status : **Answered**
Chosen Option : **2**

Section : **English Comprehension**

Q.1 **Select the most appropriate synonym of the bold word in the following sentence.**
His eloquent speech always persuades people to work for their betterment.

Ans
✗ 1. Vague
✗ 2. Inarticulate
✓ 3. Articulate
✗ 4. Short

Question ID : **630680283527**
Option 1 ID : **6306801102230**
Option 2 ID : **6306801102227**
Option 3 ID : **6306801102229**
Option 4 ID : **6306801102228**
Status : **Answered**
Chosen Option : **3**

Q.2 **Select the option that will improve the underlined part of the given sentence.**
When I <u>saw him</u>, I will ask him to return the book he borrowed.

Ans
✗ 1. shall see him
✓ 2. see him
✗ 3. have seen him
✗ 4. had seen him

Question ID : **630680160925**
Option 1 ID : **630680623064**
Option 2 ID : **630680623067**
Option 3 ID : **630680623065**
Option 4 ID : **630680623066**
Status : **Answered**
Chosen Option : **2**

FREE! Download SSC CGL, CHSL E-BOOKS CLICK HERE

CICK TO DOWNLOAD : SSC CGL TIER-1 PDF NOTES

Q.3 **Select the most appropriate meaning of the given idiom.**
A dime a dozen

Ans
✗ 1. A fair trade
✗ 2. Very wealthy
✓ 3. Something common and not special
✗ 4. Variety of amenities

Question ID : **630680360083**
Option 1 ID : **6306801402280**
Option 2 ID : **6306801402278**
Option 3 ID : **6306801402277**
Option 4 ID : **6306801402279**
Status : **Answered**
Chosen Option : **3**

Q.4 **Select the correctly spelt word to fill in the blank.**

All the chefs in the world are famous because of their _____ skills.

Ans
✗ 1. colinary
✗ 2. kulinary
✓ 3. culinary
✗ 4. kolinary

Question ID : **630680374781**
Option 1 ID : **6306801460292**
Option 2 ID : **6306801460291**
Option 3 ID : **6306801460294**
Option 4 ID : **6306801460293**
Status : **Not Answered**
Chosen Option : **--**

Q.5 **Select the most appropriate ANTONYM of the given word.**
Brittle

Ans
✗ 1. Crunchy
✓ 2. Resilient
✗ 3. Delicate
✗ 4. Aloof

Question ID : **630680377993**
Option 1 ID : **6306801473031**
Option 2 ID : **6306801473033**
Option 3 ID : **6306801473034**
Option 4 ID : **6306801473032**
Status : **Answered**
Chosen Option : **2**

FREE! Download SSC CGL, CHSL E-BOOKS CLICK HERE

CICK TO DOWNLOAD : SSC CGL TIER-1 PDF NOTES

Q.6 **Select the most appropriate ANTONYM of the underlined word in the given sentence.**
Success is not a destination, it's a journey.

Ans
✗ 1. Opulence
✗ 2. Victory
✓ 3. Failure
✗ 4. Sensation

Question ID : **630680396415**
Option 1 ID : **6306801545768**
Option 2 ID : **6306801545769**
Option 3 ID : **6306801545770**
Option 4 ID : **6306801545771**
Status : **Answered**
Chosen Option : **3**

Q.7 **Select the most appropriate synonym of the given word.**
Expertise

Ans
✓ 1. Proficiency
✗ 2. Ignorance
✗ 3. Lack
✗ 4. Clumsiness

Question ID : **630680209305**
Option 1 ID : **630680811438**
Option 2 ID : **630680811437**
Option 3 ID : **630680811436**
Option 4 ID : **630680811435**
Status : **Answered**
Chosen Option : **1**

Q.8 **Parts of the following sentence have been given as options. Select the option that contains an error.**
Solutions to the country's interior problems are still a long way away.

Ans
✓ 1. the country's interior
✗ 2. Solutions to
✗ 3. a long way away.
✗ 4. problems are still

Question ID : **630680296378**
Option 1 ID : **6306801153181**
Option 2 ID : **6306801153180**
Option 3 ID : **6306801153183**
Option 4 ID : **6306801153182**
Status : **Answered**
Chosen Option : **2**

FREE! Download SSC CGL, CHSL E-BOOKS CLICK HERE

CICK TO DOWNLOAD : SSC CGL TIER-1 PDF NOTES

Q.9 **In the following sentence, four words are underlined out of which one word is misspelt. Identify the INCORRECTLY spelt word.**
I took out a water tumbler(A) for a drink, but found the water in the metal container (B) had frozen so I couldn't quanch (C) my thirst. I ate some biscuits and offered (D) some to Hillary.

Ans
✗ 1. B
✓ 2. C
✗ 3. A
✗ 4. D

Question ID : **630680409957**
Option 1 ID : **6306801598659**
Option 2 ID : **6306801598658**
Option 3 ID : **6306801598660**
Option 4 ID : **6306801598657**
Status : **Answered**
Chosen Option : **3**

Q.10 **The following sentence has been split into four segments. Identify the segment that contains an error.**
They secret / decided / to leave / the town.

Ans
✓ 1. They secret
✗ 2. the town
✗ 3. to leave
✗ 4. decided

Question ID : **630680514349**
Option 1 ID : **6306802010021**
Option 2 ID : **6306802010024**
Option 3 ID : **6306802010023**
Option 4 ID : **6306802010022**
Status : **Answered**
Chosen Option : **1**

Q.11 **Select the most appropriate option to substitute the underlined segment in the given sentence.**
She believed she had been blamed for the mistakes of others for what happened.

Ans
✗ 1. Made a savage
✓ 2. Made a scapegoat
✗ 3. Made a spinster
✗ 4. Made a sceptic

Question ID : **630680205194**
Option 1 ID : **630680795639**
Option 2 ID : **630680795641**
Option 3 ID : **630680795640**
Option 4 ID : **630680795642**
Status : **Answered**
Chosen Option : **2**

FREE! Download SSC CGL, CHSL E-BOOKS CLICK HERE

CICK TO DOWNLOAD : SSC CGL TIER-1 PDF NOTES

Q.12 Sentences of a paragraph are given below in jumbled order. Arrange the sentences in the correct order to form a meaningful and coherent paragraph.

A. A big fancy dress ball was arranged to celebrate their homecoming.
B. It must have been a terrible shock for a young girl.
C. They had been married a month, just home from their honeymoon.
D. Just as the guests were starting to arrive, Charnley locked himself into his bedroom and shot himself.

Ans
✔ 1. BCAD
✘ 2. BCDA
✘ 3. ABCD
✘ 4. DACB

Question ID : **630680396647**
Option 1 ID : **6306801546682**
Option 2 ID : **6306801546680**
Option 3 ID : **6306801546683**
Option 4 ID : **6306801546681**
Status : **Answered**
Chosen Option : **2**

Q.13 Select the most appropriate synonym of the word in brackets to fill in the blank.
The_____(crux) of his argument was that education should continue throughout life.

Ans
✘ 1. draft
✔ 2. essence
✘ 3. etiquette
✘ 4. proposal

Question ID : **630680295945**
Option 1 ID : **6306801151492**
Option 2 ID : **6306801151493**
Option 3 ID : **6306801151494**
Option 4 ID : **6306801151495**
Status : **Not Answered**
Chosen Option : **--**

Q.14 Parts of a sentence are given below in jumbled order. Select the option that arranges the parts in the correct sequence to form a meaningful sentence.
(P) an open mind
(Q) seek it with
(O) for personal growth and development
(R) knowledge is a powerful tool

Ans
✘ 1. ORPQ
✘ 2. QROP
✘ 3. PQRO
✔ 4. ROQP

Question ID : **630680380985**
Option 1 ID : **6306801484927**
Option 2 ID : **6306801484929**
Option 3 ID : **6306801484928**
Option 4 ID : **6306801484930**
Status : **Answered**
Chosen Option : **4**

FREE! Download SSC CGL, CHSL E-BOOKS CLICK HERE

CICK TO DOWNLOAD : SSC CGL TIER-1 PDF NOTES

Q.15 Select the most appropriate synonym of the given word.

Paramount

Ans
✗ 1. collateral
✓ 2. supreme
✗ 3. trivial
✗ 4. inferior

Question ID : **630680130841**
Option 1 ID : **630680506656**
Option 2 ID : **630680506654**
Option 3 ID : **630680506655**
Option 4 ID : **630680506657**
Status : **Answered**
Chosen Option : **2**

Q.16 Select the option that can be used as a one-word substitute for the given group of words.

Failing to give proper care and attention

Ans
✗ 1. Cautious
✗ 2. Wild
✓ 3. Lax
✗ 4. Provident

Question ID : **630680414695**
Option 1 ID : **6306801617523**
Option 2 ID : **6306801617526**
Option 3 ID : **6306801617525**
Option 4 ID : **6306801617524**
Status : **Answered**
Chosen Option : **1**

Q.17 Select the option that expresses the given sentence in passive voice.
He must deliver pizza.

Ans
✗ 1. Pizza has to be delivered by him.
✓ 2. Pizza must be delivered by him.
✗ 3. Pizza have to be delivered by him.
✗ 4. Pizza can be delivered by him.

Question ID : **630680415151**
Option 1 ID : **6306801619351**
Option 2 ID : **6306801619352**
Option 3 ID : **6306801619354**
Option 4 ID : **6306801619353**
Status : **Answered**
Chosen Option : **2**

FREE! Download SSC CGL, CHSL E-BOOKS CLICK HERE

CICK TO DOWNLOAD : SSC CGL TIER-1 PDF NOTES

Q.18 Select the most appropriate meaning of the given idiom.
Nobody's fool

Ans
✗ 1. The wisest person
✗ 2. All are fools
✓ 3. Not easily deceived
✗ 4. A complete fool

Question ID : **630680199445**
Option 1 ID : **630680773420**
Option 2 ID : **630680773421**
Option 3 ID : **630680773422**
Option 4 ID : **630680773419**
Status : **Answered**
Chosen Option : **1**

Q.19 Select the option that expresses the given sentence in active voice.

The letter was being typed by the secretary when the phone rang.

Ans
✗ 1. The secretary types the letter when the phone rings.
✓ 2. The secretary was typing the letter when the phone rang.
✗ 3. The secretary is typing the letter when the phone rings.
✗ 4. The secretary will type the letter when the phone rings.

Question ID : **630680415200**
Option 1 ID : **6306801619547**
Option 2 ID : **6306801619550**
Option 3 ID : **6306801619549**
Option 4 ID : **6306801619548**
Status : **Answered**
Chosen Option : **2**

Q.20 Select the option that can be used as a one-word substitute for the underlined group of words.
Out of those group members, Rohan is the <u>one who opposes others</u>, no matter what they tell him.

Ans
✗ 1. agonist
✗ 2. anatomist
✓ 3. antagonist
✗ 4. protagonist

Question ID : **630680158616**
Option 1 ID : **630680613958**
Option 2 ID : **630680613959**
Option 3 ID : **630680613957**
Option 4 ID : **630680613956**
Status : **Answered**
Chosen Option : **3**

FREE! Download SSC CGL, CHSL E-BOOKS CLICK HERE

CICK TO DOWNLOAD : SSC CGL TIER-1 PDF NOTES

Comprehension:

In the following passage, some words have been deleted. Read the passage carefully and select the most appropriate option to fill in each blank.
Now, we have Mr. X as the President of India. It has come as a surprise (1)_____ Scheduled Tribes who are (2)_____ the most marginalised groups of the country. The Adivasis of India have been (3)_____ socially, economically and culturally. Despite various efforts taken by the Government of India, they are still under (4)_____ and suffering. Therefore, the (5)_____ a leader from a marginalised community or group does not indicate that now the entire community will be uplifted. However, this kind of move may bring certain changes in the status of the Adivasis.

SubQuestion No : 21

Q.21 Select the most appropriate option to fill in blank no.1

Ans
✗ 1. off
✗ 2. in
✓ 3. to
✗ 4. at

Question ID : **630680154509**
Option 1 ID : **630680597855**
Option 2 ID : **630680597854**
Option 3 ID : **630680597852**
Option 4 ID : **630680597853**
Status : **Answered**
Chosen Option : **3**

Comprehension:

In the following passage, some words have been deleted. Read the passage carefully and select the most appropriate option to fill in each blank.
Now, we have Mr. X as the President of India. It has come as a surprise (1)_____ Scheduled Tribes who are (2)_____ the most marginalised groups of the country. The Adivasis of India have been (3)_____ socially, economically and culturally. Despite various efforts taken by the Government of India, they are still under (4)_____ and suffering. Therefore, the (5)_____ a leader from a marginalised community or group does not indicate that now the entire community will be uplifted. However, this kind of move may bring certain changes in the status of the Adivasis.

SubQuestion No : 22

Q.22 Select the most appropriate option to fill in blank no.2

Ans
✗ 1. through
✓ 2. among
✗ 3. onto
✗ 4. therefore

Question ID : **630680154510**
Option 1 ID : **630680597856**
Option 2 ID : **630680597858**
Option 3 ID : **630680597857**
Option 4 ID : **630680597859**
Status : **Answered**
Chosen Option : **1**

FREE! Download SSC CGL, CHSL E-BOOKS CLICK HERE

CICK TO DOWNLOAD : SSC CGL TIER-1 PDF NOTES

Comprehension:

In the following passage, some words have been deleted. Read the passage carefully and select the most appropriate option to fill in each blank.
Now, we have Mr. X as the President of India. It has come as a surprise (1)_____ Scheduled Tribes who are (2)_____ the most marginalised groups of the country. The Adivasis of India have been (3)_____ socially, economically and culturally. Despite various efforts taken by the Government of India, they are still under (4)_____ and suffering. Therefore, the (5)_____ a leader from a marginalised community or group does not indicate that now the entire community will be uplifted. However, this kind of move may bring certain changes in the status of the Adivasis.

SubQuestion No : 23

Q.23 Select the most appropriate option to fill in blank no.3

Ans
✔ 1. marginalised
✘ 2. elevated
✘ 3. uplifted
✘ 4. censored

Question ID : **630680154511**
Option 1 ID : **630680597863**
Option 2 ID : **630680597860**
Option 3 ID : **630680597861**
Option 4 ID : **630680597862**
Status : **Answered**
Chosen Option : **1**

Comprehension:

In the following passage, some words have been deleted. Read the passage carefully and select the most appropriate option to fill in each blank.
Now, we have Mr. X as the President of India. It has come as a surprise (1)_____ Scheduled Tribes who are (2)_____ the most marginalised groups of the country. The Adivasis of India have been (3)_____ socially, economically and culturally. Despite various efforts taken by the Government of India, they are still under (4)_____ and suffering. Therefore, the (5)_____ a leader from a marginalised community or group does not indicate that now the entire community will be uplifted. However, this kind of move may bring certain changes in the status of the Adivasis.

SubQuestion No : 24

Q.24 Select the most appropriate option to fill in blank no.4

Ans
✘ 1. river
✘ 2. forest
✔ 3. poverty
✘ 4. abundance

Question ID : **630680154512**
Option 1 ID : **630680597867**
Option 2 ID : **630680597866**
Option 3 ID : **630680597865**
Option 4 ID : **630680597864**
Status : **Answered**
Chosen Option : **3**

FREE! Download SSC CGL, CHSL E-BOOKS CLICK HERE

कर्मचारी चयन आयोग (CGL) परीक्षा अध्ययन सामग्री



- 100% Syllabus Covered
- 9 Books, 1000+ Pages - PRINT COPY
- 3000+ MCQs - PRINT COPY
- 08 Year Solved Papers & Mock Tests (PDF Copy)
- One Year Current Affairs (PDF Copy)

हिन्दी माध्यम

50% OFF

FREE SHIPPING

SSCPORTAL.IN

SSC CGL HINDI

PDF NOTES

100% Syllabus | 1,000+ Pages

https://sscportal.in/study-kit/cgl/tier-1-hindi

CICK TO DOWNLOAD : SSC CGL TIER-1 PDF NOTES

Comprehension:

In the following passage, some words have been deleted. Read the passage carefully and select the most appropriate option to fill in each blank.
Now, we have Mr. X as the President of India. It has come as a surprise (1)_____ Scheduled Tribes who are (2)_____ the most marginalised groups of the country. The Adivasis of India have been (3)_____ socially, economically and culturally. Despite various efforts taken by the Government of India, they are still under (4)_____ and suffering. Therefore, the (5)_____ a leader from a marginalised community or group does not indicate that now the entire community will be uplifted. However, this kind of move may bring certain changes in the status of the Adivasis.

SubQuestion No : 25

Q.25 Select the most appropriate option to fill in blank no.5

Ans

✗ 1. president of

✗ 2. rejection of

✓ 3. elevation of

✗ 4. exclusion of

Question ID : **630680154513**
Option 1 ID : **630680597868**
Option 2 ID : **630680597871**
Option 3 ID : **630680597869**
Option 4 ID : **630680597870**
Status : **Answered**
Chosen Option : **1**

FREE! Download SSC CGL, CHSL E-BOOKS CLICK HERE