CICK TO DOWNLOAD : SSC CGL TIER-1 PDF NOTES

Combined Graduate Level Examination 2024 Tier I

Roll Number	
Candidate Name	
Venue Name	
Exam Date	17/09/2024
Exam Time	9:00 AM - 10:00 AM
Subject	Combined Graduate Level Examination Tier I

Section : **General Intelligence and Reasoning**

Q.1 उस समुच्चय का चयन कीजिए, जिसमें संख्याएँ एक-दूसरे से उसी तरह संबंधित हैं, जैसे दिए गए समुच्चय की संख्याएँ हैं।
(429, 514), (688, 773)
(ध्यान दीजिए: संख्याओं को उनके घटक अंकों में विभाजित किए बिना, पूर्ण संख्याओं पर संक्रियाएँ की जानी चाहिए। उदाहरण के लिए 13 - 13 पर संक्रिया जैसे जोड़ना / हटाना / गुणा करना आदि 13 पर किया जा सकता है। 13 को 1 और 3 में तोड़ना और फिर 1 और 3 पर गणितीय संक्रियाएँ करने की अनुमति नहीं है)

Ans
✗ 1. (319, 399)
✓ 2. (546, 631)
✗ 3. (407, 512)
✗ 4. (396, 491)

Question ID : **630680319358**
Option 1 ID : **6306801242337**
Option 2 ID : **6306801242339**
Option 3 ID : **6306801242338**
Option 4 ID : **6306801242340**
Status : **Answered**
Chosen Option : **2**

Q.2 चार अक्षर-समूह दिए गए हैं जिनमें से तीन किसी न किसी रूप में एक समान हैं, और एक उनसे असंगत है। उस असंगत अक्षर-समूह का चयन कीजिए।
नोट: अक्षर समूह में, असंगत व्यंजनों/स्वरों की संख्या या उनकी स्थिति पर आधारित नहीं है। .

Ans
✓ 1. ILN
✗ 2. SVY
✗ 3. BEH
✗ 4. KNQ

Question ID : **63068083314**
Option 1 ID : **630680323107**
Option 2 ID : **630680323106**
Option 3 ID : **630680323104**
Option 4 ID : **630680323105**
Status : **Answered**
Chosen Option : **1**

FREE! Download SSC CGL, CHSL E-BOOKS CLICK HERE

CICK TO DOWNLOAD : SSC CGL TIER-1 PDF NOTES

Q.3 G, F का भाई है। E, K का पिता है। C, A की पुत्री है। F, E की माता है। C, E की बहन है। G, A से किस प्रकार संबंधित है?

Ans
- ✗ 1. जीजा
- ✗ 2. ननद
- ✓ 3. साला
- ✗ 4. भाभी

Question ID : **630680216625**
Option 1 ID : **630680840464**
Option 2 ID : **630680840466**
Option 3 ID : **630680840465**
Option 4 ID : **630680840463**
Status : **Answered**
Chosen Option : **3**

Q.4 'Magnify' का संबंध 'Expand' से उसी प्रकार है जैसे 'Curtail' का संबंध '_____' से है।

Ans
- ✗ 1. Measure
- ✓ 2. Restrict
- ✗ 3. Big
- ✗ 4. Small

Question ID : **630680416585**
Option 1 ID : **6306801625104**
Option 2 ID : **6306801625105**
Option 3 ID : **6306801625106**
Option 4 ID : **6306801625103**
Status : **Answered**
Chosen Option : **4**

Q.5 दी गई आकृति में कितने त्रिभुज हैं?

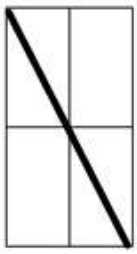

Ans
- ✗ 1. 7
- ✗ 2. 4
- ✗ 3. 2
- ✓ 4. 6

Question ID : **630680161868**
Option 1 ID : **630680626783**
Option 2 ID : **630680626781**
Option 3 ID : **630680626780**
Option 4 ID : **630680626782**
Status : **Answered**
Chosen Option : **4**

FREE! Download SSC CGL, CHSL E-BOOKS CLICK HERE

CICK TO DOWNLOAD : SSC CGL TIER-1 PDF NOTES

Q.6 एक पासे के फलकों पर संख्याएँ 1, 2, 3, 5, 6 और 8 अंकित हैं। एक ही पासे की दो अलग-अलग स्थितियाँ नीचे दिखाई गई हैं। वह संख्या चुनिए, जो संख्या 6 वाले फलक के विपरीत फलक पर होगी।

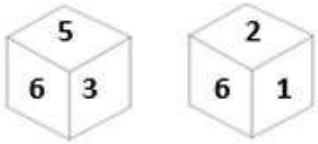

Ans

✗ 1. 2

✗ 2. 1

✓ 3. 8

✗ 4. 3

Question ID : **630680385447**
Option 1 ID : **6306801502602**
Option 2 ID : **6306801502603**
Option 3 ID : **6306801502605**
Option 4 ID : **6306801502604**
Status : **Answered**
Chosen Option : **3**

Q.7 जब दर्पण को MN पर रखा जाता हो तो दी गई आकृति के सही दर्पण प्रतिबिंब का चयन कीजिए।

Ans

✗ 1. 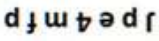

✓ 2. 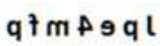

✗ 3. 

✗ 4.

Question ID : **630680325824**
Option 1 ID : **6306801267490**
Option 2 ID : **6306801267489**
Option 3 ID : **6306801267491**
Option 4 ID : **6306801267492**
Status : **Answered**
Chosen Option : **2**

FREE! Download SSC CGL, CHSL E-BOOKS CLICK HERE

CICK TO DOWNLOAD : SSC CGL TIER-1 PDF NOTES

Q.8 निम्नलिखित चार विकल्पों में से तीन किसी न किसी रूप में समान हैं और इस प्रकार, एक समूह बनाते हैं। कौन-सा विकल्प उस समूह से संबंधित नहीं है?
(ध्यान दें: संख्याओं को उनके घटक अंकों में तोड़े बिना, संक्रियाएं पूर्ण संख्याओं पर की जानी चाहिए। उदाहरण के लिए 13 को लें- संख्या 13 में की जाने वाली संक्रिया, जैसे कि जोड़ना/घटाना/गुणा करना केवल 13 में किया जा सकता है। 13 को अंक 1 और 3 में तोड़ना और फिर 1 और 3 के साथ गणितीय संक्रियाएं करने की अनुमति नहीं है।)

Ans
✔ 1. 22 – 67 – 22
✘ 2. 26 – 95 – 21
✘ 3. 16 – 45 – 21
✘ 4. 20 – 15 – 51

Question ID : **630680196580**
Option 1 ID : **630680762621**
Option 2 ID : **630680762620**
Option 3 ID : **630680762619**
Option 4 ID : **630680762622**
Status : **Not Answered**
Chosen Option : **--**

Q.9 इस प्रश्न में, तीन कथन और उसके बाद तीन निष्कर्ष क्रमांक I, II और III दिए गए हैं। कथनों को सत्य मानते हुए, भले ही वे सामान्य रूप से ज्ञात तथ्यों से भिन्न प्रतीत होते हों, तय कीजिए कि कौन सा/से निष्कर्ष कथनों का तार्किक रूप से अनुसरण करता/करते है/हैं।

कथन:
सभी कारें, पक्षी हैं।
कुछ पक्षी, पौधे हैं।
सभी पौधे, पत्ते हैं।
निष्कर्ष:
I.कुछ पक्षी, कारें हैं।
II.कुछ पौधे, पक्षी हैं।
III.कुछ पत्ते, पौधे हैं।

Ans
✔ 1. सभी निष्कर्ष अनुसरण करते हैं।
✘ 2. कोई भी निष्कर्ष अनुसरण नहीं करता है।
✘ 3. केवल निष्कर्ष I और III अनुसरण करते हैं।
✘ 4. केवल निष्कर्ष II और III अनुसरण करते हैं।

Question ID : **630680416518**
Option 1 ID : **6306801624837**
Option 2 ID : **6306801624838**
Option 3 ID : **6306801624835**
Option 4 ID : **6306801624836**
Status : **Answered**
Chosen Option : **1**

Q.10 दिए गए विकल्पों में से उस पद का चयन कीजिए, जो निम्नलिखित शृंखला में प्रश्न-चिह्न (?) को प्रतिस्थापित कर सकता है।
PJ 16, SM 25, VP 36, YS 49, ?

Ans
✘ 1. DW 64
✔ 2. BV 64
✘ 3. CV 36
✘ 4. CW 81

Question ID : **630680416233**
Option 1 ID : **6306801623695**
Option 2 ID : **6306801623697**
Option 3 ID : **6306801623698**
Option 4 ID : **6306801623696**
Status : **Answered**
Chosen Option : **2**

FREE! Download SSC CGL, CHSL E-BOOKS CLICK HERE

CICK TO DOWNLOAD : SSC CGL TIER-1 PDF NOTES

Q.11 दिए गए विकल्पों में से उस आकृति का चयन कीजिए जो प्रश्न चिह्न (?) को प्रतिस्थापित कर सकती है और शृंखला को तार्किक रूप से पूरा कर सकती है।

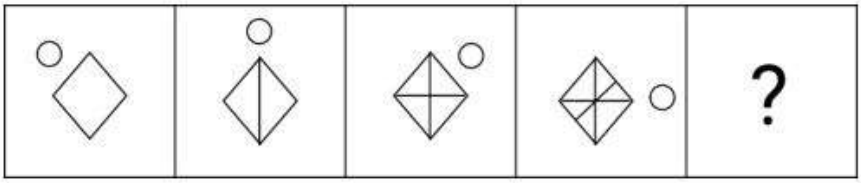

Ans

✔ 1.
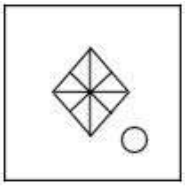

✘ 2.
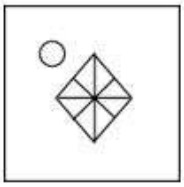

✘ 3.
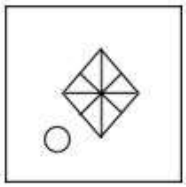

✘ 4.
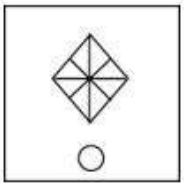

Question ID : **630680332547**
Option 1 ID : **6306801293626**
Option 2 ID : **6306801293628**
Option 3 ID : **6306801293627**
Option 4 ID : **6306801293625**
Status : **Answered**
Chosen Option : **1**

Q.12 दी गई शृंखला को पूरा करने के लिए कौन-सा अक्षर-समूह प्रश्न-चिह्न (?) को प्रतिस्थापित करेगा?
BKUZ, ENWB, ?, KTAF, NWCH

Ans
✘ 1. HRYE
✘ 2. HRYD
✔ 3. HQYD
✘ 4. HRZD

Question ID : **630680416919**
Option 1 ID : **6306801626442**
Option 2 ID : **6306801626439**
Option 3 ID : **6306801626440**
Option 4 ID : **6306801626441**
Status : **Answered**
Chosen Option : **3**

FREE! Download SSC CGL, CHSL E-BOOKS CLICK HERE

कर्मचारी चयन आयोग (CGL) परीक्षा अध्ययन सामग्री



- 100% Syllabus Covered
- 9 Books, 1000+ Pages - PRINT COPY
- 3000+ MCQs - PRINT COPY
- 08 Year Solved Papers & Mock Tests (PDF Copy)
- One Year Current Affairs (PDF Copy)

हिन्दी माध्यम

50% OFF

FREE SHIPPING

SSCPORTAL.IN

SSC CGL HINDI

PDF NOTES

100% Syllabus | 1,000+ Pages

https://sscportal.in/study-kit/cgl/tier-1-hindi

CICK TO DOWNLOAD : SSC CGL TIER-1 PDF NOTES

Q.13 किसी निश्चित तर्क के अनुसार 30 का संबंध 41 से है। उसी तर्क के अनुसार 14 का संबंध 21 से है। उसी तर्क के अनुसार 54 निम्नलिखित में से किस संख्या से संबंधित है?
नोट: संख्याओं को उनके घटक अंकों में विभक्त किए बिना पूर्ण संख्याओं पर संक्रियाएं की जानी चाहिए। उदाहरण के लिए 13 को लें- 13 पर संक्रियाएं, जैसे कि जोड़ना/घटाना/गुणा आदि 13 में की जा सकती हैं। 13 को 1 और 3 में विभक्त करना और फिर 1 और 3 पर गणितीय संक्रियाएं करने की अनुमति नहीं है।

Ans
✗ 1. 53
✓ 2. 69
✗ 3. 59
✗ 4. 63

Question ID : **630680162504**
Option 1 ID : **630680629314**
Option 2 ID : **630680629313**
Option 3 ID : **630680629315**
Option 4 ID : **630680629312**
Status : **Not Answered**
Chosen Option : **--**

Q.14 यदि '+' और '–' को आपस में बदल दिया जाए, और '×' और '÷' को आपस में बदल दिया जाए, तो निम्नलिखित समीकरण में प्रश्न-चिन्ह (?) के स्थान पर क्या आयेगा?
101 ÷ 48 − 13013 × 13 + 12 = ?

Ans
✓ 1. 5837
✗ 2. 5835
✗ 3. 5834
✗ 4. 5836

Question ID : **630680411652**
Option 1 ID : **6306801605446**
Option 2 ID : **6306801605444**
Option 3 ID : **6306801605443**
Option 4 ID : **6306801605445**
Status : **Answered**
Chosen Option : **1**

FREE! Download SSC CGL, CHSL E-BOOKS CLICK HERE

CICK TO DOWNLOAD : SSC CGL TIER-1 PDF NOTES

Q.15 एक कागज को नीचे दिखाए अनुसार मोड़ा और काटा जाता है। खोलने पर यह कैसा दिखाई देगा?

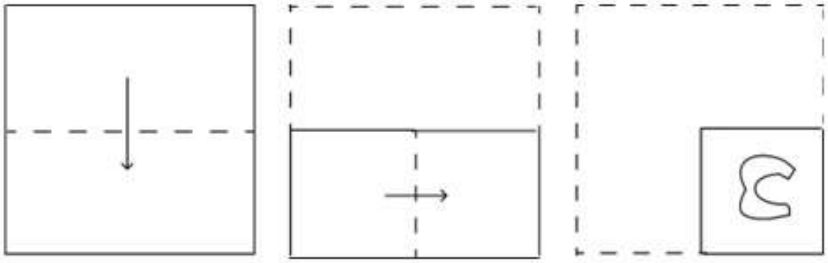

Ans

✗ 1.

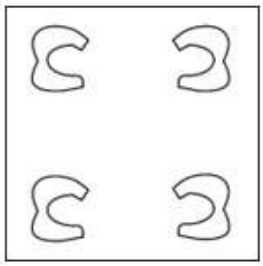

✗ 2.

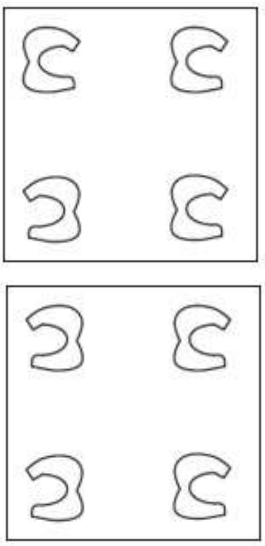

✓ 3.

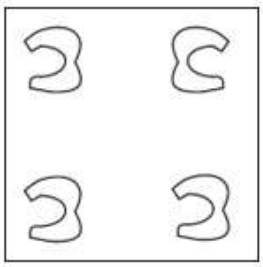

✗ 4.

Question ID : **630680294957**
Option 1 ID : **6306801147556**
Option 2 ID : **6306801147558**
Option 3 ID : **6306801147557**
Option 4 ID : **6306801147559**
Status : **Answered**
Chosen Option : **3**

FREE! Download SSC CGL, CHSL E-BOOKS CLICK HERE

CICK TO DOWNLOAD : SSC CGL TIER-1 PDF NOTES

Q.16 दिए गए कथनों और निष्कर्षों को ध्यानपूर्वक पढ़ें। यह मानते हुए कि कथनों में दी गई जानकारी सत्य है, भले ही यह सामान्य रूप से ज्ञात तथ्यों से भिन्न प्रतीत होती हो, तय करें कि दिए गए निष्कर्षों में से कौन-सा/से निष्कर्ष, कथनों का तार्किक रूप से अनुसरण करता है/करते हैं।

कथन:
कुछ गेंदें, खिलौने हैं।
सभी वृत्त, गेंदें हैं।
सभी गेंदें, गड्ढे हैं।

निष्कर्ष:
(I) कुछ वृत्त, खिलौने हैं।
(II) सभी गड्ढे, खिलौने हैं।

Ans
✗ 1. निष्कर्ष (I) और निष्कर्ष (II), दोनों अनुसरण करते हैं।
✗ 2. केवल निष्कर्ष (II) अनुसरण करता है।
✓ 3. न तो निष्कर्ष (I) अनुसरण करता है और न ही निष्कर्ष (II) अनुसरण करता है।
✗ 4. केवल निष्कर्ष (I) अनुसरण करता है।

Question ID : **630680386649**
Option 1 ID : **6306801507308**
Option 2 ID : **6306801507307**
Option 3 ID : **6306801507309**
Option 4 ID : **6306801507306**
Status : **Answered**
Chosen Option : **4**

Q.17 यदि शब्द 'CERTAIN' के प्रत्येक अक्षर को अंग्रेजी वर्णमाला क्रम में व्यवस्थित किया जाए, तो कितने अक्षरों की स्थिति अपरिवर्तित रहेगी?

Ans
✗ 1. दो
✗ 2. एक
✗ 3. चार
✓ 4. शून्य

Question ID : **630680349933**
Option 1 ID : **6306801362024**
Option 2 ID : **6306801362023**
Option 3 ID : **6306801362022**
Option 4 ID : **6306801362021**
Status : **Answered**
Chosen Option : **4**

Q.18 एक निश्चित कूट भाषा में, 'BIRTHDAY' को 'ADHTRIBY' के रूप में लिखा जाता है और 'CONGRESS' को 'SERGNOCS' के रूप में लिखा जाता है। उसी भाषा में 'DIVISION' को किस प्रकार लिखा जाएगा?

Ans
✗ 1. NDOISIVI
✗ 2. DNOISIVI
✓ 3. OISIVIDN
✗ 4. NOISIVID

Question ID : **630680285528**
Option 1 ID : **6306801110079**
Option 2 ID : **6306801110080**
Option 3 ID : **6306801110081**
Option 4 ID : **6306801110082**
Status : **Answered**
Chosen Option : **3**

FREE! Download SSC CGL, CHSL E-BOOKS CLICK HERE

CICK TO DOWNLOAD : SSC CGL TIER-1 PDF NOTES

Q.19 एक निश्चित तर्क का अनुसरण करते हुए 189, 21 से संबंधित है। उसी तर्क का अनुसरण करते हुए, 234, 26 से संबंधित है। उसी तर्क का अनुसरण करते हुए, 468 निम्नलिखित में से किससे संबंधित है?

(नोट: संख्याओं को उसके घटक अंकों में तोड़े बिना, पूर्ण संख्याओं पर संक्रियाएं की जानी चाहिए। उदाहरण के लिए संख्या 13 को लें - 13 पर संक्रियाएं, जैसे कि 13 में जोड़ना/घटाना/गुणा करना आदि, की जा सकती हैं। 13 को 1 और 3 में तोड़ने और फिर 1 और 3 पर गणितीय संक्रियाएं करने की अनुमति नहीं है)

Ans
1. 58
2. 52
3. 54
4. 48

Question ID : **630680344660**
Option 1 ID : **6306801340949**
Option 2 ID : **6306801340952**
Option 3 ID : **6306801340951**
Option 4 ID : **6306801340950**
Status : **Answered**
Chosen Option : **2**

Q.20 उस विकल्प का चयन कीजिए जो उन अक्षरों को दर्शाता है, जिन्हें नीचे दिए गए रिक्त स्थानों में बाएँ से दाएँ क्रमिक रूप से रखने पर अक्षर श्रृंखला पूरी हो जाएगी।
_ D R G _ Z D R _ B Z D _ G B Z _ R G B

Ans
1. BBGRD
2. ZBGRD
3. ZBGRB
4. ZBDRD

Question ID : **630680261794**
Option 1 ID : **6306801016833**
Option 2 ID : **6306801016832**
Option 3 ID : **6306801016834**
Option 4 ID : **6306801016831**
Status : **Answered**
Chosen Option : **2**

Q.21 एक निश्चित कूट भाषा में 'FLBS' को '156' और 'MXT' को '228' के रूप में कूटबद्ध किया जाता है। उस भाषा में 'VDZN' को किस प्रकार कूटबद्ध किया जाएगा?

Ans
1. 160
2. 220
3. 264
4. 180

Question ID : **630680416228**
Option 1 ID : **6306801623678**
Option 2 ID : **6306801623677**
Option 3 ID : **6306801623675**
Option 4 ID : **6306801623676**
Status : **Answered**
Chosen Option : **3**

FREE! Download SSC CGL, CHSL E-BOOKS CLICK HERE

CICK TO DOWNLOAD : SSC CGL TIER-1 PDF NOTES

Q.22 दिए गए विकल्पों में से उस संख्या का चयन कीजिए, जो निम्नलिखित शृंखला में प्रश्न-चिह्न (?) को प्रतिस्थापित कर सकती है।
96,77,60,47,36, ?

Ans
1. 28
2. 32
3. 30
4. 29

Question ID : **630680411904**
Option 1 ID : **6306801606454**
Option 2 ID : **6306801606453**
Option 3 ID : **6306801606452**
Option 4 ID : **6306801606451**
Status : **Answered**
Chosen Option : **4**

Q.23 निम्नलिखित समीकरण में, यदि '÷' और '–' को आपस में बदल दिया जाए तथा '×' और '+' को आपस में बदल दिया जाए, तो '?' के स्थान पर क्या आएगा?

4 + 9 × 48 – 6 ÷ 7 = ?

Ans
1. 30
2. 27
3. 41
4. 37

Question ID : **630680339256**
Option 1 ID : **6306801319593**
Option 2 ID : **6306801319594**
Option 3 ID : **6306801319595**
Option 4 ID : **6306801319596**
Status : **Answered**
Chosen Option : **4**

FREE! Download SSC CGL, CHSL E-BOOKS CLICK HERE

CICK TO DOWNLOAD : SSC CGL TIER-1 PDF NOTES

Q.24 एक पैटर्न के साथ एक पारदर्शी शीट नीचे दी गई है। उस विकल्प का चयन कीजिए जो उस पैटर्न को दर्शाता है जो दी गई पारदर्शी शीट को मध्य क्षैतिज रेखा पर मोड़ने पर दिखाई देगा।

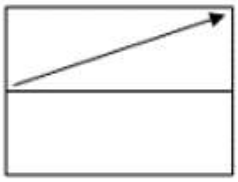

Ans

✗ 1.

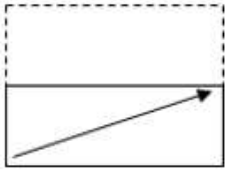

✗ 2.

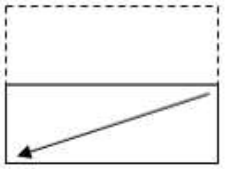

✓ 3.

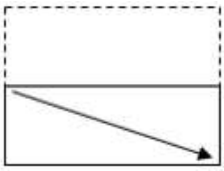

✗ 4.

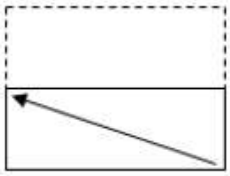

Question ID : **630680389398**
Option 1 ID : **6306801518050**
Option 2 ID : **6306801518051**
Option 3 ID : **6306801518052**
Option 4 ID : **6306801518053**
Status : **Answered**
Chosen Option : **3**

FREE! Download SSC CGL, CHSL E-BOOKS CLICK HERE

CICK TO DOWNLOAD : SSC CGL TIER-1 PDF NOTES

Q.25 विकल्पों में दी गई उस आकृति की पहचान कीजिए जिसे ? के स्थान पर रखने पर श्रृंखला तर्कसंगत रूप से पूर्ण हो जाएगी।

2 1 5 3 0	5 2 4 0 1	4 5 6 1 2	6 4 7 2 5	?

Ans

✔ 1.

7	6
9	
5	4

✘ 2.

6	4
2	
7	5

✘ 3.

4	7
5	
6	2

✘ 4.

1	5
2	
4	5

Question ID : **630680524403**
Option 1 ID : **6306802049714**
Option 2 ID : **6306802049711**
Option 3 ID : **6306802049712**
Option 4 ID : **6306802049713**
Status : **Answered**
Chosen Option : **1**

Section : **General Awareness**

Q.1 कथक से संबंधित भारतीय शास्त्रीय नर्तक/नर्तकी की पहचान कीजिए।

Ans

✘ 1. शारोदी सैकिया

✘ 2. वेदांतम सत्यनारायण सरमा

✘ 3. केलुचरण महापात्र

✔ 4. रोहिणी भाटे

Question ID : **630680512086**
Option 1 ID : **6306802001316**
Option 2 ID : **6306802001317**
Option 3 ID : **6306802001315**
Option 4 ID : **6306802001314**
Status : **Answered**
Chosen Option : **2**

FREE! Download SSC CGL, CHSL E-BOOKS CLICK HERE

CICK TO DOWNLOAD : SSC CGL TIER-1 PDF NOTES

Q.2 निम्नलिखित में से कौन-सी पहाड़ी पूर्वी घाट में स्थित है?

Ans
- ✗ 1. अनई मुडी पहाड़ी
- ✗ 2. खासी पहाड़ी
- ✗ 3. मिज़ो पहाड़ी
- ✓ 4. शेवरॉय पहाड़ी

Question ID : **630680401676**
Option 1 ID : **6306801566484**
Option 2 ID : **6306801566483**
Option 3 ID : **6306801566482**
Option 4 ID : **6306801566485**
Status : **Answered**
Chosen Option : **2**

Q.3 निम्नलिखित में से कौन-सी संख्या शतरंज में इस्तेमाल होने वाली सफेद मोहरों की संख्या का सबसे अच्छा वर्णन करती है?

Ans
- ✓ 1. 16
- ✗ 2. 17
- ✗ 3. 19
- ✗ 4. 18

Question ID : **630680510777**
Option 1 ID : **6306801996238**
Option 2 ID : **6306801996239**
Option 3 ID : **6306801996241**
Option 4 ID : **6306801996240**
Status : **Answered**
Chosen Option : **1**

Q.4 पद्म विभूषण पुरस्कार 2022 प्राप्त करने वाली प्रभा अत्रे किस घराने से संबंधित हैं?

Ans
- ✗ 1. आगरा घराना
- ✗ 2. मेवाती घराना
- ✗ 3. इंदौर घराना
- ✓ 4. किराना घराना

Question ID : **630680511794**
Option 1 ID : **6306802000147**
Option 2 ID : **6306802000146**
Option 3 ID : **6306802000148**
Option 4 ID : **6306802000149**
Status : **Answered**
Chosen Option : **2**

Q.5 यदि जीएनपी पिछले वर्ष की तुलना में 16% अधिक है और मुद्रास्फीति की दर 9% है, तो अर्थव्यवस्था में उत्पादन में _____ की वृद्धि हुई है।

Ans
- ✗ 1. 6%
- ✗ 2. 4%
- ✓ 3. 7%
- ✗ 4. 5%

Question ID : **630680193003**
Option 1 ID : **630680748551**
Option 2 ID : **630680748549**
Option 3 ID : **630680748552**
Option 4 ID : **630680748550**
Status : **Answered**
Chosen Option : **3**

FREE! Download SSC CGL, CHSL E-BOOKS CLICK HERE

CICK TO DOWNLOAD : SSC CGL TIER-1 PDF NOTES

Q.6 भूपेन हजारिका _____ राज्य के सबसे प्रसिद्ध व्यक्तित्वों में से एक थे।

Ans
✗ 1. नागालैंड
✓ 2. असम
✗ 3. मणिपुर
✗ 4. ओड़िशा

Question ID : **630680512246**
Option 1 ID : **6306802001955**
Option 2 ID : **6306802001954**
Option 3 ID : **6306802001956**
Option 4 ID : **6306802001957**
Status : **Answered**
Chosen Option : **2**

Q.7 जब तनु सल्फ़्यूरिक अम्ल (H_2SO_4) , मैग्नीशियम (Mg) के साथ अभिक्रिया करता है, तो निम्नलिखित में से कौन-सी गैस निकलती है?

Ans
✗ 1. O_2
✓ 2. H_2
✗ 3. SO_2
✗ 4. SO_3

Question ID : **630680517171**
Option 1 ID : **6306802021080**
Option 2 ID : **6306802021081**
Option 3 ID : **6306802021082**
Option 4 ID : **6306802021083**
Status : **Answered**
Chosen Option : **2**

Q.8 ऑस्ट्रेलिया में उष्णकटिबंधीय चक्रवातों को _____ के रूप में जाना जाता है।

Ans
✗ 1. साइक्लोन
✗ 2. हरिकेन
✗ 3. टाइफ़ून
✓ 4. विली-विलीज़

Question ID : **63068091122**
Option 1 ID : **630680353245**
Option 2 ID : **630680353242**
Option 3 ID : **630680353244**
Option 4 ID : **630680353243**
Status : **Answered**
Chosen Option : **2**

Q.9 प्रधानमंत्री किसान सम्मान निधि योजना में लाभार्थियों को हर वर्ष कितनी राशि प्रदान की जाती है?

Ans
✓ 1. ₹6,000
✗ 2. ₹5,000
✗ 3. ₹4,000
✗ 4. ₹3,000

Question ID : **630680310852**
Option 1 ID : **6306801209533**
Option 2 ID : **6306801209534**
Option 3 ID : **6306801209535**
Option 4 ID : **6306801209536**
Status : **Answered**
Chosen Option : **1**

FREE! Download SSC CGL, CHSL E-BOOKS CLICK HERE

CICK TO DOWNLOAD : SSC CGL TIER-1 PDF NOTES

Q.10 रोगों का कौन-सा समूह जीवाणुओं के कारण होता है?

Ans
- ✗ 1. मलेरिया, सामान्य सर्दी-जुकाम, इन्फ्लूएंजा
- ✗ 2. इन्फ्लुएंजा, डेंगी, हैजा
- ✗ 3. डेंगी, मलेरिया, हैजा
- ✓ 4. आंत्र ज्वर, हैजा, तपेदिक

Question ID : **630680517130**
Option 1 ID : **6306802020919**
Option 2 ID : **6306802020917**
Option 3 ID : **6306802020918**
Option 4 ID : **6306802020916**
Status : **Answered**
Chosen Option : **4**

Q.11 ब्रिटिश संसद ने किस वर्ष भारतीय उच्च न्यायालय अधिनियम पेश किया?

Ans
- ✗ 1. 1860
- ✓ 2. 1861
- ✗ 3. 1858
- ✗ 4. 1859

Question ID : **630680511484**
Option 1 ID : **6306801999060**
Option 2 ID : **6306801999061**
Option 3 ID : **6306801999058**
Option 4 ID : **6306801999059**
Status : **Answered**
Chosen Option : **4**

Q.12 निम्नलिखित में से कौन सा/से कर्तव्य भारतीय संविधान द्वारा मौलिक कर्तव्यों के रूप में निर्धारित नहीं किया गया है/किए गए हैं?
1. देश की रक्षा करना
2. आयकर का भुगतान करना
3. चुनाव में मतदान करना
4. सार्वजनिक संपत्ति की सुरक्षा करना

Ans
- ✗ 1. केवल 1
- ✓ 2. 2 और 3 दोनों
- ✗ 3. केवल 2
- ✗ 4. 2 और 4 दोनों

Question ID : **630680282976**
Option 1 ID : **6306801100035**
Option 2 ID : **6306801100037**
Option 3 ID : **6306801100036**
Option 4 ID : **6306801100038**
Status : **Answered**
Chosen Option : **2**

FREE! Download SSC CGL, CHSL E-BOOKS CLICK HERE

CICK TO DOWNLOAD : SSC CGL TIER-1 PDF NOTES

Q.13 पर्यूषण पर्व निम्नलिखित में से किस समुदाय के लोगों द्वारा मनाया जाता है?

Ans
- ✗ 1. हिंदू
- ✗ 2. सिख
- ✓ 3. जैन
- ✗ 4. मुसलमान

Question ID : **630680158753**
Option 1 ID : **630680614505**
Option 2 ID : **630680614507**
Option 3 ID : **630680614504**
Option 4 ID : **630680614506**
Status : **Answered**
Chosen Option : **3**

Q.14 भारत की जनगणना 2011 के अनुसार, किस केंद्र शासित प्रदेश में झुग्गियों में रहने वाली आबादी सबसे अधिक है?

Ans
- ✗ 1. चंडीगढ़
- ✓ 2. दिल्ली
- ✗ 3. अंडमान और निकोबार द्वीप समूह
- ✗ 4. पुदुचेरी

Question ID : **630680209236**
Option 1 ID : **630680811159**
Option 2 ID : **630680811160**
Option 3 ID : **630680811162**
Option 4 ID : **630680811161**
Status : **Answered**
Chosen Option : **3**

Q.15 निम्नलिखित में से कौन-सा भारत में निजी क्षेत्र के उद्योग का एक उदाहरण है?

Ans
- ✗ 1. स्टील अथॉरिटी ऑफ इंडिया लिमिटेड
- ✓ 2. टाटा आयरन एंड स्टील कंपनी
- ✗ 3. ऑयल इंडिया लिमिटेड
- ✗ 4. भारत हैवी इलेक्ट्रिकल्स लिमिटेड

Question ID : **630680327631**
Option 1 ID : **6306801274522**
Option 2 ID : **6306801274521**
Option 3 ID : **6306801274524**
Option 4 ID : **6306801274523**
Status : **Answered**
Chosen Option : **2**

Q.16 निम्नलिखित भारतीय महिला मुक्केबाजों में से किसे 2022 में अंतरराष्ट्रीय मुक्केबाजी संघ की अध्यक्ष और एक मतदान सदस्य के रूप में चुना गया था?

Ans
- ✓ 1. लवलीना बोरगोहेन
- ✗ 2. मैरी कॉम
- ✗ 3. पूजा रानी
- ✗ 4. निकहत ज़रीन

Question ID : **630680196027**
Option 1 ID : **630680760496**
Option 2 ID : **630680760495**
Option 3 ID : **630680760498**
Option 4 ID : **630680760497**
Status : **Answered**
Chosen Option : **2**

FREE! Download SSC CGL, CHSL E-BOOKS CLICK HERE

CICK TO DOWNLOAD : SSC CGL TIER-1 PDF NOTES

Q.17 वुड का घोषणा-पत्र, 1854 मुख्य रूप से निम्नलिखित में से किस विषय से संबंधित था?

Ans
- ✗ 1. स्वास्थ्य
- ✗ 2. वित्त
- ✗ 3. रेलवे
- ✓ 4. शिक्षा

Question ID : **630680412323**
Option 1 ID : **6306801608116**
Option 2 ID : **6306801608117**
Option 3 ID : **6306801608118**
Option 4 ID : **6306801608115**
Status : **Answered**
Chosen Option : **4**

Q.18 कैलोरीमीटर अच्छी तापीय चालकता वाली _____ की पतली शीट से बना एक छोटा कंटेनर है।

Ans
- ✗ 1. प्लैटिनम
- ✓ 2. ताँबे
- ✗ 3. सीज़ियम
- ✗ 4. चाँदी

Question ID : **63068085784**
Option 1 ID : **630680332596**
Option 2 ID : **630680332599**
Option 3 ID : **630680332598**
Option 4 ID : **630680332597**
Status : **Answered**
Chosen Option : **1**

Q.19 निम्नलिखित में से कौन-सा युग्म गलत सुमेलित है?.

Ans
- ✗ 1. माल्टोज: गेहूँ, कॉर्नमील और जौ
- ✗ 2. फ्रक्टोज: अंगूर
- ✓ 3. स्टार्च: अंडे की जर्दी
- ✗ 4. लैक्टोज: दूध

Question ID : **630680199658**
Option 1 ID : **630680774239**
Option 2 ID : **630680774242**
Option 3 ID : **630680774241**
Option 4 ID : **630680774240**
Status : **Not Answered**
Chosen Option : **--**

Q.20 भारत में प्रो कबड्डी लीग की शुरुआत पहली बार कब की गई?

Ans
- ✓ 1. 2014 में
- ✗ 2. 2008 में
- ✗ 3. 2007 में
- ✗ 4. 2015 में

Question ID : **630680510835**
Option 1 ID : **6306801996470**
Option 2 ID : **6306801996473**
Option 3 ID : **6306801996472**
Option 4 ID : **6306801996471**
Status : **Answered**
Chosen Option : **2**

FREE! Download SSC CGL, CHSL E-BOOKS CLICK HERE

CICK TO DOWNLOAD : SSC CGL TIER-1 PDF NOTES

Q.21 निम्नलिखित में से कौन मुगल सम्राट बाबर का उत्तराधिकारी था?

Ans
✔ 1. हुमायूं
✘ 2. शाहजहाँ
✘ 3. औरंगजेब
✘ 4. जहांगीर

Question ID : **630680412405**
Option 1 ID : **6306801608444**
Option 2 ID : **6306801608443**
Option 3 ID : **6306801608445**
Option 4 ID : **6306801608446**
Status : **Answered**
Chosen Option : **1**

Q.22 MPLADS योजना किस वर्ष लागू की गई थी?

Ans
✔ 1. 1993
✘ 2. 2003
✘ 3. 2013
✘ 4. 1983

Question ID : **630680195344**
Option 1 ID : **630680757847**
Option 2 ID : **630680757846**
Option 3 ID : **630680757845**
Option 4 ID : **630680757848**
Status : **Not Answered**
Chosen Option : **--**

Q.23 पेशावर के पास मर्दन से बरामद तख्त-ए-बही शिलालेख, वर्तमान पाकिस्तान के उत्तर-पश्चिमी क्षेत्र में निम्नलिखित में से किस राजवंश के शासन का वर्णन करता है?

Ans
✘ 1. हिंद-यूनानी (Indo-Greek)
✘ 2. बैक्ट्रियन (Bactrian)
✘ 3. शक (Sakas)
✔ 4. पार्थियन (Parthians)

Question ID : **630680412518**
Option 1 ID : **6306801608895**
Option 2 ID : **6306801608896**
Option 3 ID : **6306801608898**
Option 4 ID : **6306801608897**
Status : **Answered**
Chosen Option : **1**

FREE! Download SSC CGL, CHSL E-BOOKS CLICK HERE

SSC CGL (Tier-1) STUDY NOTES

- 100% CGL Exam Syllabus Covered
- 12 Books, 1300+ Pages
- 5600+ MCQs
- Previous Year Papers & Mocks
- 1 Year Current Affairs
- Support & Guidance

FREE SHIPPING

50% OFF

100% SAFE

SSCPORTAL.IN

SSC CGL

PDF NOTES

100% Syllabus | 1300+ Pages

50% OFF

CLICK HERE

CICK TO DOWNLOAD : SSC CGL TIER-1 PDF NOTES

Q.24 निम्नलिखित मदों का मिलान कीजिए।

सूची I	सूची II
i. व्यापार प्राथमिकताओं की वैश्विक प्रणाली	a. 2021
ii. भारत-खाड़ी सहयोग परिषद मुक्त व्यापार समझौता	b. 1988
iii. भारत-कोरिया गणराज्य व्यापक आर्थिक साझेदारी समझौता	c. 2004
iv. 7वीं व्यापार नीति समीक्षा	d. 2010

Ans
✗ 1. i (c), ii (d), iii (a), iv (b)
✗ 2. i (d), ii (a), iii (b), iv (c)
✓ 3. i (b), ii (c), iii (d), iv (a)
✗ 4. i (b), ii (a), iii (d), iv (c)

Question ID : **6306801048054**
Option 1 ID : **6306804114264**
Option 2 ID : **6306804114263**
Option 3 ID : **6306804114262**
Option 4 ID : **6306804114265**
Status : **Not Answered**
Chosen Option : **--**

Q.25 निम्नलिखित में से किस वर्ष में भारत के चुनाव आयोग की स्थापना की गई थी?

Ans
✗ 1. 1947
✗ 2. 1952
✗ 3. 1955
✓ 4. 1950

Question ID : **630680157580**
Option 1 ID : **630680609848**
Option 2 ID : **630680609850**
Option 3 ID : **630680609851**
Option 4 ID : **630680609849**
Status : **Answered**
Chosen Option : **4**

Section : **Quantitative Aptitude**

FREE! Download SSC CGL, CHSL E-BOOKS CLICK HERE

CICK TO DOWNLOAD : SSC CGL TIER-1 PDF NOTES

Q.1 अक्षरा और सिद्धार्थ क्रमशः 8 km/h और 10 km/h की दर से स्थल P से Q तक 72 km की दूरी तय करते हैं। सिद्धार्थ स्थल Q पर पहले पहुंचता है और तुरंत लौटता है और अक्षरा से स्थल R पर मिलता है। P से R की दूरी ज्ञात कीजिए।

Ans
- ✗ 1. 63 km
- ✓ 2. 64 km
- ✗ 3. 66 km
- ✗ 4. 65 km

Question ID : **630680131691**
Option 1 ID : **630680509974**
Option 2 ID : **630680509975**
Option 3 ID : **630680509976**
Option 4 ID : **630680509977**
Status : **Not Answered**
Chosen Option : **--**

Q.2 k का वह न्यूनतम मान ज्ञात करें जिसके लिए 7-अंकों वाली संख्या 249k876, 6 से विभाज्य हो।

Ans
- ✓ 1. 0
- ✗ 2. 5
- ✗ 3. 1
- ✗ 4. 7

Question ID : **630680131104**
Option 1 ID : **630680507686**
Option 2 ID : **630680507687**
Option 3 ID : **630680507689**
Option 4 ID : **630680507688**
Status : **Answered**
Chosen Option : **1**

Q.3 यदि $x > 1$ और $x^2 + \frac{1}{x^2} = 83$ है, तो $x^3 - \frac{1}{x^3}$ का मान ज्ञात कीजिए।

Ans
- ✗ 1. 754
- ✓ 2. 756
- ✗ 3. 884
- ✗ 4. 876

Question ID : **630680413520**
Option 1 ID : **6306801612906**
Option 2 ID : **6306801612904**
Option 3 ID : **6306801612907**
Option 4 ID : **6306801612905**
Status : **Answered**
Chosen Option : **2**

FREE! Download SSC CGL, CHSL E-BOOKS CLICK HERE

CICK TO DOWNLOAD : SSC CGL TIER-1 PDF NOTES

Q.4 k, के किस मान के लिए, समीकरण निकाय kx - 15y + 7 = 0 और 7x - 21y - 19 = 0 का कोई हल नहीं है?

Ans
- ✗ 1. 12
- ✗ 2. 25
- ✗ 3. 6
- ✓ 4. 5

Question ID : **630680198890**
Option 1 ID : **630680771290**
Option 2 ID : **630680771289**
Option 3 ID : **630680771287**
Option 4 ID : **630680771288**
Status : **Not Answered**
Chosen Option : **--**

Q.5 नीचे दी गई तालिका में, एक कंपनी द्वारा तीन वर्ष में निर्मित तीन अलग-अलग प्रकार की कारों, X, Y और Z की संख्या दी गई है। तालिका का ध्यानपूर्वक अध्ययन कीजिए और उसके बाद प्रश्न का उत्तर दीजिए।

कार/वर्ष	2020	2021	2022
X	2560	3201	3551
Y	2250	2802	3020
Z	2750	2550	2600

वर्ष 2022 में कंपनी द्वारा निर्मित कारों की औसत संख्या कितनी है?

Ans
- ✓ 1. 3057
- ✗ 2. 2851
- ✗ 3. 3227
- ✗ 4. 2720

Question ID : **6306801047984**
Option 1 ID : **6306804113980**
Option 2 ID : **6306804113979**
Option 3 ID : **6306804113981**
Option 4 ID : **6306804113978**
Status : **Answered**
Chosen Option : **1**

Q.6 एक बेलनाकार बर्तन के आधार की परिधि 44 cm है और इसकी ऊँचाई 25 cm है। इसमें कितने लीटर जल आ सकता है? ($\pi = \frac{22}{7}$ लें)

Ans
- ✗ 1. 83.5
- ✓ 2. 3.85
- ✗ 3. 38.5
- ✗ 4. 3.58

Question ID : **630680421539**
Option 1 ID : **6306801644621**
Option 2 ID : **6306801644619**
Option 3 ID : **6306801644620**
Option 4 ID : **6306801644622**
Status : **Answered**
Chosen Option : **2**

FREE! Download SSC CGL, CHSL E-BOOKS CLICK HERE

CICK TO DOWNLOAD : SSC CGL TIER-1 PDF NOTES

Q.7 किस कोण पर चाप की लंबाई वृत्त की परिधि की आधी होती है?

Ans
✗ 1. 90°
✓ 2. 180°
✗ 3. 270°
✗ 4. 120°

Question ID : **630680421356**
Option 1 ID : **6306801643887**
Option 2 ID : **6306801643889**
Option 3 ID : **6306801643890**
Option 4 ID : **6306801643888**
Status : **Answered**
Chosen Option : **2**

Q.8 यदि एक दुकानदार चीनी को ₹44.8 प्रति kg की दर से बेचता है, तो वह 12% लाभ अर्जित करता है। पानी के रिसाव के कारण चीनी का $\frac{1}{5}$ हिस्सा खराब हो जाता है। 5% लाभ प्राप्त करने के लिए शेष चीनी का प्रति kg विक्रय मूल्य क्या होना चाहिए?

Ans
✗ 1. ₹51.5
✗ 2. ₹49.5
✗ 3. ₹48.5
✓ 4. ₹52.5

Question ID : **630680428884**
Option 1 ID : **6306801673580**
Option 2 ID : **6306801673581**
Option 3 ID : **6306801673583**
Option 4 ID : **6306801673582**
Status : **Answered**
Chosen Option : **4**

Q.9 एक दुकानदार अपने क्रय मूल्य से 20% अधिक मूल्य अंकित करता है। यदि वह 30% की छूट देता है, तो उसका हानि प्रतिशत ज्ञात कीजिए।

Ans
✗ 1. 15%
✗ 2. 25%
✗ 3. 20%
✓ 4. 16%

Question ID : **630680143030**
Option 1 ID : **630680553584**
Option 2 ID : **630680553583**
Option 3 ID : **630680553582**
Option 4 ID : **630680553585**
Status : **Answered**
Chosen Option : **4**

FREE! Download SSC CGL, CHSL E-BOOKS CLICK HERE

CICK TO DOWNLOAD : SSC CGL TIER-1 PDF NOTES

Q.10 उस त्रिज्यखण्ड के केन्द्रीय कोण की माप क्या होगी, यदि उसका क्षेत्रफल 16π और त्रिज्या 8 है।

Ans
1. 60°
2. 75°
3. 90°
4. 108°

Question ID : **630680195533**
Option 1 ID : **630680758601**
Option 2 ID : **630680758604**
Option 3 ID : **630680758602**
Option 4 ID : **630680758603**
Status : **Answered**
Chosen Option : **3**

Q.11 दिया गया पाई चार्ट एक क्षेत्र में वार्षिक कृषि उत्पादन (टन में) दर्शाता है। कुल उत्पादन 8600 टन है।

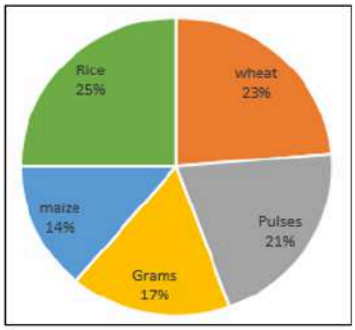

Rice - चावल, Wheat - गेहूं, Pulses - दाल, Grams - चना, Maize - मक्का

इस क्षेत्र में चावल का वार्षिक उत्पादन कितना है?

Ans
1. 2150 टन
2. 2051 टन
3. 1052 टन
4. 5012 टन

Question ID : **630680428147**
Option 1 ID : **6306801670633**
Option 2 ID : **6306801670635**
Option 3 ID : **6306801670634**
Option 4 ID : **6306801670632**
Status : **Answered**
Chosen Option : **1**

FREE! Download SSC CGL, CHSL E-BOOKS CLICK HERE

CICK TO DOWNLOAD : SSC CGL TIER-1 PDF NOTES

Q.12 किसी दुकानदार ने निम्नांकित वस्तुएँ आरुषि को बेचकर लाभ कमाया। दिए गए आँकड़ों के आधार पर उसने कुल कितना लाभ (₹ में) कमाया?

वस्तु	प्रति इकाई क्रय मूल्य (₹)	क्रय मूल्य पर लाभ (%)
मोबाइल	20,000	10
लैपटॉप	72,000	20
मोबाइल कवर	300	12

Ans
✗ 1. 34,760
✗ 2. 16,636
✗ 3. 16,760
✓ 4. 16,436

Question ID : **630680428085**
Option 1 ID : **6306801670387**
Option 2 ID : **6306801670386**
Option 3 ID : **6306801670385**
Option 4 ID : **6306801670384**
Status : **Answered**
Chosen Option : **4**

Q.13 यदि $\sec\theta = \frac{29}{20}$ है, जहां $0 < \theta < 90^\circ$ है, तो $3\text{cosec}\theta + 3\cot\theta$ का मान क्या होगा?

Ans
✓ 1. 7
✗ 2. 49
✗ 3. 14
✗ 4. 7/3

Question ID : **630680518869**
Option 1 ID : **6306802027949**
Option 2 ID : **6306802027951**
Option 3 ID : **6306802027950**
Option 4 ID : **6306802027948**
Status : **Answered**
Chosen Option : **1**

Q.14 दुर्लभ सिक्कों के संग्रह में, प्रत्येक चार गैर-सोने के सिक्कों के लिए एक सोने का सिक्का है। यदि संग्रह में 20 और सोने के सिक्के जोड़े जाते हैं, तो सोने के सिक्कों की संख्या और गैर-सोने के सिक्कों की संख्या का अनुपात 2 : 3 होगा। संग्रह में सिक्कों की कुल संख्या अब _____ हो जाएगी।

Ans
✓ 1. 80
✗ 2. 60
✗ 3. 48
✗ 4. 100

Question ID : **630680380361**
Option 1 ID : **6306801482441**
Option 2 ID : **6306801482440**
Option 3 ID : **6306801482439**
Option 4 ID : **6306801482442**
Status : **Not Answered**
Chosen Option : **--**

FREE! Download SSC CGL, CHSL E-BOOKS CLICK HERE

CICK TO DOWNLOAD : SSC CGL TIER-1 PDF NOTES

Q.15 AP और AQ केंद्र O वाले किसी वृत्त पर बाह्य बिंदु A से खींची गई दो स्पर्श रेखाएँ हैं। यदि ∠PAQ = 40° है, तो ∠POQ ज्ञात कीजिए।

Ans
✔ 1. 140°
✘ 2. 150°
✘ 3. 130°
✘ 4. 120°

Question ID : **630680195538**
Option 1 ID : **630680758623**
Option 2 ID : **630680758624**
Option 3 ID : **630680758622**
Option 4 ID : **630680758621**
Status : **Answered**
Chosen Option : **1**

Q.16 प्रथम 47 प्राकृतिक संख्याओं के वर्गों का औसत ज्ञात कीजिए।

Ans
✘ 1. 762
✘ 2. 761
✔ 3. 760
✘ 4. 759

Question ID : **630680568974**
Option 1 ID : **6306802224708**
Option 2 ID : **6306802224706**
Option 3 ID : **6306802224705**
Option 4 ID : **6306802224707**
Status : **Not Answered**
Chosen Option : **--**

Q.17 यदि ₹7,200 पर 16% प्रति वर्ष की दर से 3 वर्षों का साधारण ब्याज, ₹9,600 पर x% प्रति वर्ष की दर से 4 वर्षों के साधारण ब्याज के बराबर है। तो x का मान किसके बराबर होगा?

Ans
✘ 1. 10%
✘ 2. 11%
✘ 3. 8%
✔ 4. 9%

Question ID : **630680357949**
Option 1 ID : **6306801393788**
Option 2 ID : **6306801393787**
Option 3 ID : **6306801393786**
Option 4 ID : **6306801393785**
Status : **Answered**
Chosen Option : **4**

FREE! Download SSC CGL, CHSL E-BOOKS CLICK HERE

CICK TO DOWNLOAD : SSC CGL TIER-1 PDF NOTES

Q.18 दिए गए ग्राफ़ का अध्ययन करें और उसके बाद पूछे जाने वाले प्रश्न का उत्तर दें।
ग्राफ़ चार कंपनियों: A, B, C और D द्वारा निर्मित तीन उत्पादों: P, Q और R की बिक्री दर्शाता है।

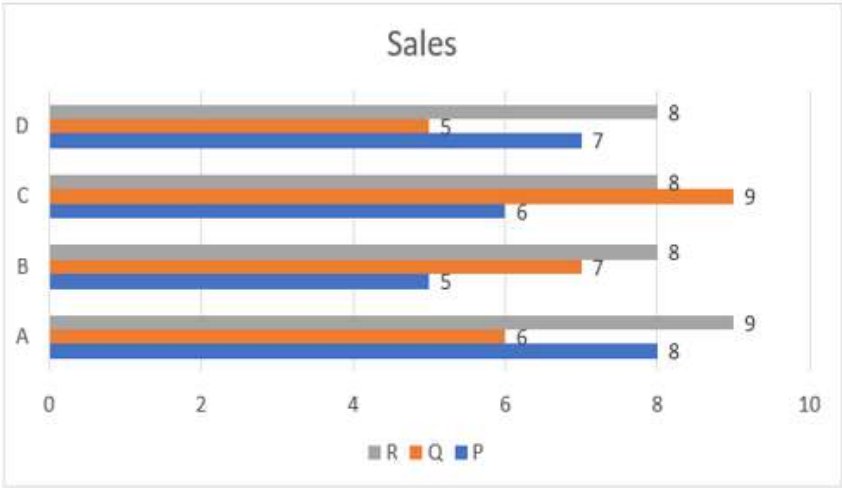

Sales – बिक्री
कंपनी C का कुल उत्पादन, कंपनी A के कुल उत्पादन का कितना प्रतिशत है?

Ans
1. 110%
2. 90%
3. 100%
4. 105%

Question ID : **630680427980**
Option 1 ID : **6306801669965**
Option 2 ID : **6306801669966**
Option 3 ID : **6306801669964**
Option 4 ID : **6306801669967**
Status : **Answered**
Chosen Option : **3**

Q.19 10 cm, 20 cm और 20 cm भुजाओं वाले ΔABC तथा 13 cm कर्ण और लंबों में से 12 cm के एक लंब वाले समकोण त्रिभुज ΔPQR के क्षेत्रफल (cm^2 में) में कितना अंतर होगा?
नोट: $\sqrt{2} = 1.41$, $\sqrt{3} = 1.73$, $\sqrt{7} = 2.65$, $\sqrt{13} = 3.61$, $\sqrt{15} = 3.87$, $\sqrt{21} = 4.58$

Ans
1. 36.57
2. 53.58
3. 70.05
4. 66.75

Question ID : **630680382145**
Option 1 ID : **6306801489495**
Option 2 ID : **6306801489497**
Option 3 ID : **6306801489496**
Option 4 ID : **6306801489498**
Status : **Answered**
Chosen Option : **4**

FREE! Download SSC CGL, CHSL E-BOOKS CLICK HERE

CICK TO DOWNLOAD : SSC CGL TIER-1 PDF NOTES

Q.20 यदि A : B = 6 : 8 और B : C = 7 : 10 है, तो A : B : C का मान ज्ञात कीजिए।

Ans
1. 21:23:40
2. 23:32:40
3. 14:31:20
4. 21:28:40 ✔

Question ID : **630680915063**
Option 1 ID : **6306803585297**
Option 2 ID : **6306803585298**
Option 3 ID : **6306803585299**
Option 4 ID : **6306803585296**
Status : **Answered**
Chosen Option : **4**

Q.21 यदि $\cos 24^\circ = \frac{m}{n}$ है, तो $(\text{cosec}\, 24^\circ - \cos 66^\circ)$ का मान क्या होगा?

Ans
1. $\frac{m^2}{n\sqrt{m^2-n^2}}$
2. $\frac{n^2}{m\sqrt{n^2-m^2}}$
3. $\frac{m^2}{n\sqrt{n^2-m^2}}$ ✔
4. $\frac{n^2}{m\sqrt{m^2-n^2}}$

Question ID : **630680387748**
Option 1 ID : **6306801511628**
Option 2 ID : **6306801511626**
Option 3 ID : **6306801511627**
Option 4 ID : **6306801511629**
Status : **Answered**
Chosen Option : **3**

Q.22 एक समकोण Δ ABC में, $\angle B = 90^\circ$ है, यदि tanA = 1 है, तो 4 sinA cosA =_____ होगा।

Ans
1. 2 ✔
2. 4
3. $\frac{1}{2}$
4. 1

Question ID : **630680402482**
Option 1 ID : **6306801569673**
Option 2 ID : **6306801569674**
Option 3 ID : **6306801569672**
Option 4 ID : **6306801569671**
Status : **Answered**
Chosen Option : **1**

FREE! Download SSC CGL, CHSL E-BOOKS CLICK HERE

CICK TO DOWNLOAD : SSC CGL TIER-1 PDF NOTES

Q.23 एक कंपनी में सभी कर्मचारियों को समान वेतन मिल रहा है। यदि कर्मचारियों की संख्या 20% बढ़ जाती है और प्रति व्यक्ति उनका वेतन 18% कम हो जाता है, तो कुल वेतन में कितने प्रतिशत की कमी होगी?

Ans
✗ 1. 1%
✗ 2. 2.4%
✓ 3. 1.6%
✗ 4. 1.4%

Question ID : **630680412061**
Option 1 ID : **6306801607079**
Option 2 ID : **6306801607082**
Option 3 ID : **6306801607081**
Option 4 ID : **6306801607080**
Status : **Answered**
Chosen Option : **4**

Q.24 सरलीकरण करें:

$$[(\frac{1}{6} \div \frac{1}{9} \times \frac{2}{3}) \times 18 + 5]$$

Ans
✗ 1. 9
✗ 2. 27
✓ 3. 23
✗ 4. 15

Question ID : **630680415868**
Option 1 ID : **6306801622241**
Option 2 ID : **6306801622240**
Option 3 ID : **6306801622242**
Option 4 ID : **6306801622239**
Status : **Answered**
Chosen Option : **3**

Q.25 पाइप A और B एक टंकी को क्रमशः 15 घंटे और 25 घंटे में भर सकते हैं, जबकि पाइप C पूरी टंकी को 40 घंटे में खाली कर सकता है। तीनों पाइप एक साथ खोले जाते हैं, लेकिन पाइप A, 5 घंटे बाद बंद हो जाता है। टंकी का शेष भाग कितने घंटे बाद भर जाएगा?

Ans
✗ 1. $43\frac{4}{9}$
✗ 2. $41\frac{4}{9}$
✗ 3. $44\frac{4}{9}$
✓ 4. $39\frac{4}{9}$

Question ID : **630680395577**
Option 1 ID : **6306801542473**
Option 2 ID : **6306801542474**
Option 3 ID : **6306801542472**
Option 4 ID : **6306801542475**
Status : **Answered**
Chosen Option : **4**

Section : **English Comprehension**

FREE! Download SSC CGL, CHSL E-BOOKS CLICK HERE

CICK TO DOWNLOAD : SSC CGL TIER-1 PDF NOTES

Q.1 **The following sentence has been divided into four segments. Identify the segment in which the article has been used INCORRECTLY.**
UNESCO works to / strengthen an intellectual / and moral solidarity / of humankind.

Ans
✗ 1. UNESCO works to
✗ 2. of humankind.
✓ 3. strengthen an intellectual
✗ 4. and moral solidarity

Question ID : **630680206691**
Option 1 ID : **630680801363**
Option 2 ID : **630680801366**
Option 3 ID : **630680801364**
Option 4 ID : **630680801365**
Status : **Answered**
Chosen Option : **4**

Q.2 **Sentences of a paragraph are given below in jumbled order. Arrange the sentences in the correct order to form a meaningful and coherent paragraph. Note: This is an advertisement of an ice-cream brand.**
(A) That's why Silky is deliciously different and exceptionally versatile, natural, thick and durable ice cream.
(B) Beautifully firm, nice, silky rather than thin and watery, it stays in shape and stands on top of fruits or pastries without soaking in.
(C) Silky thick double ice cream has a unique, fresh taste and texture.

Ans
✓ 1. CBA
✗ 2. ABC
✗ 3. BCA
✗ 4. BAC

Question ID : **630680195455**
Option 1 ID : **630680758290**
Option 2 ID : **630680758289**
Option 3 ID : **630680758292**
Option 4 ID : **630680758291**
Status : **Answered**
Chosen Option : **1**

Q.3 **Select the INCORRECTLY spelt word.**

Ans
✗ 1. Contribution
✗ 2. Mediation
✗ 3. Miscalculation
✓ 4. Eficient

Question ID : **630680378002**
Option 1 ID : **6306801473068**
Option 2 ID : **6306801473067**
Option 3 ID : **6306801473070**
Option 4 ID : **6306801473069**
Status : **Answered**
Chosen Option : **4**

FREE! Download SSC CGL, CHSL E-BOOKS CLICK HERE

CICK TO DOWNLOAD : SSC CGL TIER-1 PDF NOTES

Q.4 **Select the word OPPOSITE in meaning to the underlined word in the given sentence.**
Feeling discouraged, she finally finds the motivation for pursing her goal.

Ans
- ✗ 1. disappointed
- ✗ 2. admired
- ✓ 3. inspired
- ✗ 4. energetic

Question ID : **630680517430**
Option 1 ID : **6306802022119**
Option 2 ID : **6306802022117**
Option 3 ID : **6306802022116**
Option 4 ID : **6306802022118**
Status : **Answered**
Chosen Option : **4**

Q.5 **Select the most appropriate synonym of the given word.**
Bully

Ans
- ✓ 1. Oppressor
- ✗ 2. Plough
- ✗ 3. Oxen
- ✗ 4. Coddle

Question ID : **630680132464**
Option 1 ID : **630680512992**
Option 2 ID : **630680512990**
Option 3 ID : **630680512991**
Option 4 ID : **630680512993**
Status : **Answered**
Chosen Option : **4**

Q.6 **Select the most appropriate option that can substitute the underlined segment in the given sentence. If no substitution is required, select 'No substitution'.**
No matter how hard work you, your boss will not recognise your efforts.

Ans
- ✗ 1. work you do hard
- ✓ 2. hard you work
- ✗ 3. hardly you work
- ✗ 4. no substitution

Question ID : **630680176609**
Option 1 ID : **630680684658**
Option 2 ID : **630680684656**
Option 3 ID : **630680684657**
Option 4 ID : **630680684659**
Status : **Answered**
Chosen Option : **2**

FREE! Download SSC CGL, CHSL E-BOOKS CLICK HERE

CICK TO DOWNLOAD : SSC CGL TIER-1 PDF NOTES

Q.7 **Select the most appropriate option that can substitute the underlined segment in the given sentence.**
To the general public, William was best known as a crusader <u>for peace and as an admired critic about</u> social, political and ethical subjects.

Ans
✗ 1. in peace and as an admired critic about
✗ 2. for peace and as an admired critic by
✓ 3. for peace and as an admired critic on
✗ 4. about peace and as an admired critic about

Question ID : **630680158386**
Option 1 ID : **630680613074**
Option 2 ID : **630680613073**
Option 3 ID : **630680613072**
Option 4 ID : **630680613075**
Status : **Answered**
Chosen Option : **3**

Q.8 **Select the option that can be used as a one-word substitute for the given group of words.**
The study of coins

Ans
✗ 1. Cartography
✓ 2. Numismatics
✗ 3. Choreography
✗ 4. Informatics

Question ID : **630680405383**
Option 1 ID : **6306801580743**
Option 2 ID : **6306801580744**
Option 3 ID : **6306801580745**
Option 4 ID : **6306801580742**
Status : **Answered**
Chosen Option : **2**

Q.9 **Select the most appropriate option to fill in the blank.**

Ram went to _____ an ice cream.

Ans
✗ 1. bye
✗ 2. by
✓ 3. buy
✗ 4. byre

Question ID : **630680123967**
Option 1 ID : **630680480727**
Option 2 ID : **630680480728**
Option 3 ID : **630680480729**
Option 4 ID : **630680480726**
Status : **Answered**
Chosen Option : **3**

FREE! Download SSC CGL, CHSL E-BOOKS CLICK HERE

CICK TO DOWNLOAD : SSC CGL TIER-1 PDF NOTES

Q.10 **Select the option that can be used as a one-word substitute for the given group of words.**
A person who is inclined to see the worst aspect of things

Ans
✗ 1. Optimist
✗ 2. Philanthropist
✓ 3. Pessimist
✗ 4. Altruist

Question ID : **630680414763**
Option 1 ID : **6306801617798**
Option 2 ID : **6306801617795**
Option 3 ID : **6306801617796**
Option 4 ID : **6306801617797**
Status : **Answered**
Chosen Option : **3**

Q.11 **Select the most appropriate synonym of the given word.**
Thankful

Ans
✓ 1. Obliged
✗ 2. Ungrateful
✗ 3. Affirmation
✗ 4. Obscure

Question ID : **630680300702**
Option 1 ID : **6306801169625**
Option 2 ID : **6306801169626**
Option 3 ID : **6306801169623**
Option 4 ID : **6306801169624**
Status : **Answered**
Chosen Option : **1**

Q.12 **Select the most appropriate synonym of the given word.**
Labour

Ans
✗ 1. Relaxation
✓ 2. Toil
✗ 3. Mesh
✗ 4. Dalliance

Question ID : **630680168486**
Option 1 ID : **630680652558**
Option 2 ID : **630680652559**
Option 3 ID : **630680652557**
Option 4 ID : **630680652556**
Status : **Answered**
Chosen Option : **2**

FREE! Download SSC CGL, CHSL E-BOOKS CLICK HERE

CICK TO DOWNLOAD : SSC CGL TIER-1 PDF NOTES

Q.13 Select the most appropriate meaning of the underlined idiom.

In those days, we did not expect luxuries; we were thankful if we could keep the wolf from the door.

Ans
✗ 1. Encourage starvation
✗ 2. Relish food
✓ 3. Avoid starvation
✗ 4. Wallow in poverty

Question ID : **630680119691**
Option 1 ID : **630680463847**
Option 2 ID : **630680463849**
Option 3 ID : **630680463846**
Option 4 ID : **630680463848**
Status : **Answered**
Chosen Option : **3**

Q.14 Select the option that expresses the given sentence in passive voice.
He will give a lecture on personality development.

Ans
✗ 1. A lecture on personality development will be giving by him.
✗ 2. A lecture on personality development can be given by him.
✗ 3. A lecture will be given on personality development.
✓ 4. A lecture on personality development will be given by him.

Question ID : **630680192099**
Option 1 ID : **630680744999**
Option 2 ID : **630680745000**
Option 3 ID : **630680744998**
Option 4 ID : **630680744997**
Status : **Answered**
Chosen Option : **4**

Q.15 Select the sentence that contains a spelling error.

Ans
✗ 1. Rail lines go parallel.
✓ 2. The host institution must provide the delegates with accomodation at a subsidised rate.
✗ 3. The boss addressed the meeting.
✗ 4. The occurrence of the lunar eclipse is often a mystery for children.

Question ID : **630680409931**
Option 1 ID : **6306801598553**
Option 2 ID : **6306801598554**
Option 3 ID : **6306801598556**
Option 4 ID : **6306801598555**
Status : **Answered**
Chosen Option : **1**

FREE! Download SSC CGL, CHSL E-BOOKS CLICK HERE

CICK TO DOWNLOAD : SSC CGL TIER-1 PDF NOTES

Q.16 **Select the most appropriate option that can substitute the underlined segment in the given sentence.**

My cousin works <u>day and night</u> to achieve success in life.

Ans
✔ 1. around the clock
✘ 2. great dealing
✘ 3. vale of tears
✘ 4. a handful

Question ID : **630680374777**
Option 1 ID : **6306801460277**
Option 2 ID : **6306801460276**
Option 3 ID : **6306801460278**
Option 4 ID : **6306801460275**
Status : **Answered**
Chosen Option : **1**

Q.17 **Select the most appropriate ANTONYM of the given word.**
Entire

Ans
✔ 1. Incomplete
✘ 2. Undivided
✘ 3. Ingress
✘ 4. Thorough

Question ID : **630680295211**
Option 1 ID : **6306801148571**
Option 2 ID : **6306801148569**
Option 3 ID : **6306801148570**
Option 4 ID : **6306801148568**
Status : **Answered**
Chosen Option : **1**

Q.18 **The following sentence has been split into four segments. Identify the segment that contains an error.**

Dr. Sinha has / brought about a new / book on social / impact of child labour.

Ans
✔ 1. brought about a new
✘ 2. impact of child labour
✘ 3. Dr. Sinha has
✘ 4. book on social

Question ID : **630680512936**
Option 1 ID : **6306802004691**
Option 2 ID : **6306802004693**
Option 3 ID : **6306802004690**
Option 4 ID : **6306802004692**
Status : **Answered**
Chosen Option : **1**

FREE! Download SSC CGL, CHSL E-BOOKS CLICK HERE

CICK TO DOWNLOAD : SSC CGL TIER-1 PDF NOTES

Q.19 Select the most appropriate option to substitute the underlined segment in the given sentence.
It is very hard for her to provide <u>the necessities of her family</u> .

Ans
✔ 1. the necessities to her family
✘ 2. the necessities from her families
✘ 3. the necessity of her family
✘ 4. the necessities by her family

Question ID : **630680176626**
Option 1 ID : **630680684727**
Option 2 ID : **630680684726**
Option 3 ID : **630680684724**
Option 4 ID : **630680684725**
Status : **Answered**
Chosen Option : **1**

Q.20 Select the option that expresses the given sentence in passive voice.
His behaviour vexes me sometimes.

Ans
✔ 1. I am sometimes vexed by his behaviour.
✘ 2. His behaviour is vexed.
✘ 3. Sometimes he vexes me with his behaviour.
✘ 4. He is being vexing me with his behaviour

Question ID : **630680415153**
Option 1 ID : **6306801619360**
Option 2 ID : **6306801619362**
Option 3 ID : **6306801619359**
Option 4 ID : **6306801619361**
Status : **Answered**
Chosen Option : **1**

Comprehension:

In the following passage, some words have been deleted. Read the passage carefully and select the most appropriate option to fill in each blank.
I have a recurring dream. Actually, I have a few: one is about dismembering a body , I'd rather not get into it, but the (1) _____ pertinent one is about college. It's the end of the semester, and I suddenly (2) _____ that there is a class I forgot to attend, ever, and now I have to sit for the final exam. I wake up panicked, my GPA in peril. How could I have done this? Why do I so (3) _____ dissatisfy myself? Then I remember I haven't been in college in more than a decade.
Someone with (4) _____ knowledge of my academic career might point out that this nightmare scenario is not that far removed from my actual collegiate experience, and that at certain times in my life, it did not take the magic of slumber to find me completely unprepared for a final. And, well, (5) _____ of what may or may not be true of my personal scholastic rigour, I suspect the school-stress dream is quite a common one.

SubQuestion No : 21

Q.21 Select the most appropriate option to fill in blank number 1.

Ans
✔ 1. more
✘ 2. best
✘ 3. strong
✘ 4. better

Question ID : **630680164281**
Option 1 ID : **630680636248**
Option 2 ID : **630680636251**
Option 3 ID : **630680636250**
Option 4 ID : **630680636249**
Status : **Answered**
Chosen Option : **2**

FREE! Download SSC CGL, CHSL E-BOOKS CLICK HERE

CICK TO DOWNLOAD : SSC CGL TIER-1 PDF NOTES

Comprehension:

In the following passage, some words have been deleted. Read the passage carefully and select the most appropriate option to fill in each blank.
I have a recurring dream. Actually, I have a few: one is about dismembering a body , I'd rather not get into it, but the (1) _____ pertinent one is about college. It's the end of the semester, and I suddenly (2) _____ that there is a class I forgot to attend, ever, and now I have to sit for the final exam. I wake up panicked, my GPA in peril. How could I have done this? Why do I so (3) _____ dissatisfy myself? Then I remember I haven't been in college in more than a decade.
Someone with (4) _____ knowledge of my academic career might point out that this nightmare scenario is not that far removed from my actual collegiate experience, and that at certain times in my life, it did not take the magic of slumber to find me completely unprepared for a final. And, well, (5) _____ of what may or may not be true of my personal scholastic rigour, I suspect the school-stress dream is quite a common one.

SubQuestion No : 22

Q.22 Select the most appropriate option to fill in blank number 2.

Ans
✔ 1. realise
✘ 2. promise
✘ 3. offer
✘ 4. praise

Question ID : **630680164282**
Option 1 ID : **630680636254**
Option 2 ID : **630680636252**
Option 3 ID : **630680636253**
Option 4 ID : **630680636255**
Status : **Answered**
Chosen Option : **1**

Comprehension:

In the following passage, some words have been deleted. Read the passage carefully and select the most appropriate option to fill in each blank.
I have a recurring dream. Actually, I have a few: one is about dismembering a body , I'd rather not get into it, but the (1) _____ pertinent one is about college. It's the end of the semester, and I suddenly (2) _____ that there is a class I forgot to attend, ever, and now I have to sit for the final exam. I wake up panicked, my GPA in peril. How could I have done this? Why do I so (3) _____ dissatisfy myself? Then I remember I haven't been in college in more than a decade.
Someone with (4) _____ knowledge of my academic career might point out that this nightmare scenario is not that far removed from my actual collegiate experience, and that at certain times in my life, it did not take the magic of slumber to find me completely unprepared for a final. And, well, (5) _____ of what may or may not be true of my personal scholastic rigour, I suspect the school-stress dream is quite a common one.

SubQuestion No : 23

Q.23 Select the most appropriate option to fill in blank number 3.

Ans
✔ 1. consistently
✘ 2. conflictingly
✘ 3. clumsily
✘ 4. unpredictability

Question ID : **630680164283**
Option 1 ID : **630680636257**
Option 2 ID : **630680636259**
Option 3 ID : **630680636256**
Option 4 ID : **630680636258**
Status : **Answered**
Chosen Option : **1**

FREE! Download SSC CGL, CHSL E-BOOKS CLICK HERE

कर्मचारी चयन आयोग (CGL) परीक्षा अध्ययन सामग्री



- 100% Syllabus Covered
- 9 Books, 1000+ Pages - PRINT COPY
- 3000+ MCQs - PRINT COPY
- 08 Year Solved Papers & Mock Tests (PDF Copy)
- One Year Current Affairs (PDF Copy)

हिन्दी माध्यम

50% OFF

FREE SHIPPING

SSCPORTAL.IN

SSC CGL HINDI

PDF NOTES

100% Syllabus | 1,000+ Pages

https://sscportal.in/study-kit/cgl/tier-1-hindi

CICK TO DOWNLOAD : SSC CGL TIER-1 PDF NOTES

Comprehension:

In the following passage, some words have been deleted. Read the passage carefully and select the most appropriate option to fill in each blank.
I have a recurring dream. Actually, I have a few: one is about dismembering a body , I'd rather not get into it, but the (1) _____ pertinent one is about college. It's the end of the semester, and I suddenly (2) _____ that there is a class I forgot to attend, ever, and now I have to sit for the final exam. I wake up panicked, my GPA in peril. How could I have done this? Why do I so (3) _____ dissatisfy myself? Then I remember I haven't been in college in more than a decade.
Someone with (4) _____ knowledge of my academic career might point out that this nightmare scenario is not that far removed from my actual collegiate experience, and that at certain times in my life, it did not take the magic of slumber to find me completely unprepared for a final. And, well, (5) _____ of what may or may not be true of my personal scholastic rigour, I suspect the school-stress dream is quite a common one.

SubQuestion No : 24

Q.24 Select the most appropriate option to fill in blank number 4.

Ans
✗ 1. instigate
✗ 2. distant
✗ 3. bleak
✓ 4. remote

Question ID : **630680164284**
Option 1 ID : **630680636262**
Option 2 ID : **630680636260**
Option 3 ID : **630680636261**
Option 4 ID : **630680636263**
Status : **Answered**
Chosen Option : **3**

Comprehension:

In the following passage, some words have been deleted. Read the passage carefully and select the most appropriate option to fill in each blank.
I have a recurring dream. Actually, I have a few: one is about dismembering a body , I'd rather not get into it, but the (1) _____ pertinent one is about college. It's the end of the semester, and I suddenly (2) _____ that there is a class I forgot to attend, ever, and now I have to sit for the final exam. I wake up panicked, my GPA in peril. How could I have done this? Why do I so (3) _____ dissatisfy myself? Then I remember I haven't been in college in more than a decade.
Someone with (4) _____ knowledge of my academic career might point out that this nightmare scenario is not that far removed from my actual collegiate experience, and that at certain times in my life, it did not take the magic of slumber to find me completely unprepared for a final. And, well, (5) _____ of what may or may not be true of my personal scholastic rigour, I suspect the school-stress dream is quite a common one.

SubQuestion No : 25

Q.25 Select the most appropriate option to fill in blank number 5.

Ans
✓ 1. regardless
✗ 2. inasmuch
✗ 3. nevertheless
✗ 4. notwithstanding

Question ID : **630680164285**
Option 1 ID : **630680636264**
Option 2 ID : **630680636265**
Option 3 ID : **630680636266**
Option 4 ID : **630680636267**
Status : **Answered**
Chosen Option : **4**

FREE! Download SSC CGL, CHSL E-BOOKS CLICK HERE